康軒　數學　第 1 單元

國小數學 1 下單元卷　一、50 以內的數

得分

一年____班____號　姓名：_____

1 數數看，有多少？(每題 4 分，共 12 分)

(1) (　　)顆櫻桃



(2) (　　)顆湯圓

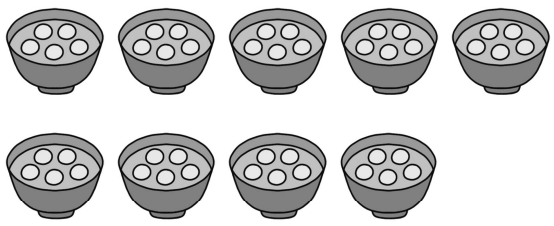

(3) (　　)隻魚



2 填填看。(每格 2 分，共 40 分)

(1) 按照順序填填看。

① 36－37－□－39－□－□－42

② 50－49－□－47－□－45－□

③ 15－20－25－□－□

④ 43－33－□－□－□

(2) 39 多 1 是(　　)，50 少 1 是(　　)。

(3) 45 少 10 是(　　)，33 多 10 是(　　)。

(4) 媽媽煮了 48 個水餃。吃掉 1 個，剩下(　　)個水餃；再吃掉 1 個，剩下(　　)個水餃。

(5) 妹妹有 22 張卡片。再買 10 張，共有(　　)張卡片；再買 10 張，共有(　　)張卡片。

(6) 老師買了 36 個 ，請 40 個小朋友一個人吃 1 個， 夠不夠？(　　)

3 哪一個數比較大，在□裡畫○。(每題 3 分，共 12 分)

(1) 27　36　□　□

(2) 42　32　□　□

(3) 48　50　□　□

(4) 45　41　□　□

4 數一數，填填看。

(每個答案 4 分，共 24 分)

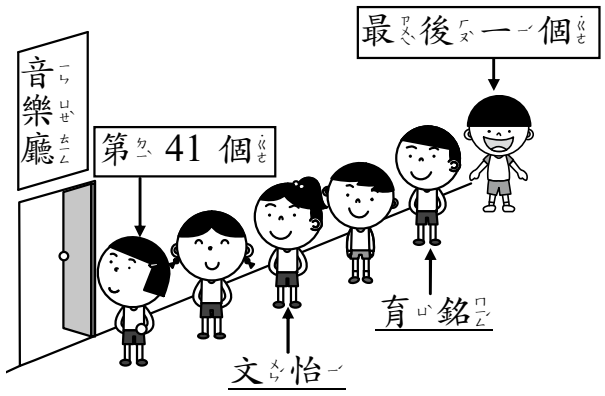

(1) 秀娟排在第 41 個。她的前面有(　　)個人已經進音樂廳，她的後面有(　　)個人。

(2) 最後一個是排在第(　　)個。

(3) 文怡排在第(　　)個，育銘排在第(　　)個，誰會先進入音樂廳？(文怡 ， 育銘)

5 素養題。(每格 3 分，共 12 分)

成宇有收集郵票的習慣，他已經收集了 24 張郵票，回答下列問題。

他再收集 1 張，共有(　　)張郵票；再收集 5 張，共有(　　)張郵票；再收集 10 張，共有(　　)張郵票；再收集 10 張，共有(　　)張郵票。