康軒　數學　第 3 單元

國小數學 1 下單元卷　三、圖形與分類

得分

一年____班____號　姓名：_____

1 兩個圖形的形狀大小都一樣的，在(　　)裡畫◯，不一樣的打×。(每題 4 分，共 12 分)

(1) 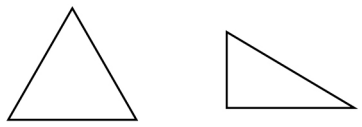 　(　　)

(2) 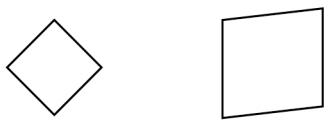 　(　　)

(3) 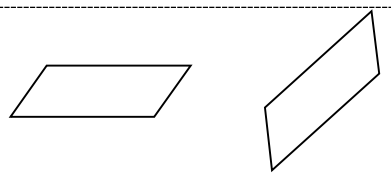 　(　　)

2 左邊圖形移動了哪一片圖卡，才能變成右邊的圖形，用代號寫下來。(每題 7 分，共 14 分)

(1) 移動了(　　)圖卡。

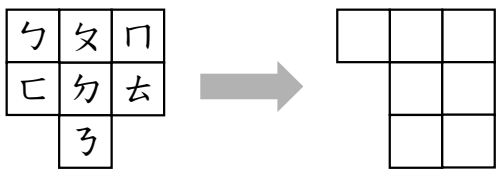

(2) 移動了(　　)圖卡。

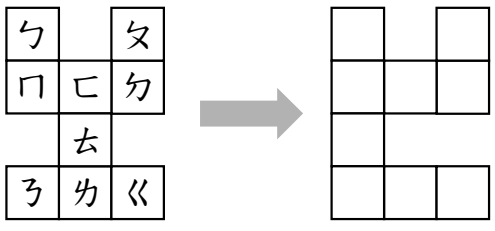

3 數一數，下面的圖形各是用幾個◺排成的？(每題 6 分，共 12 分)

(1) 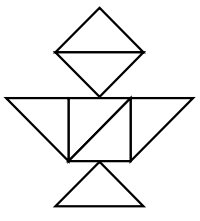 　(　　)個◺

(2) 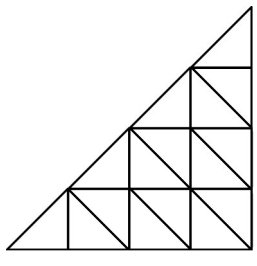 　(　　)個◺

4 每種水果各有幾個？數數看，再回答問題。(每格 6 分，共 42 分)



(1) 各有幾個？

橘子		(　　)個
草莓		(　　)個
香蕉		(　　)根
蘋果		(　　)個

(2) 哪一種水果最多？(　　)

(3) 哪一種水果最少？(　　)

(4) 蘋果比橘子多(　　)個。

5 素養題。(每個答案 4 分，共 20 分)

下表是一年二班學生選舉模範生的票數統計表，填填看，並在正確的□裡畫◯。

林于涵	王建丞	吳可銓
𝍸𝍸一	𝍸下	𝍸丌
(　　)人	(　　)人	(　　)人

(1) 一年二班的模範生由誰當選？

□林于涵　□王建丞　□吳可銓

(2) 得到第二高票的是誰？

□林于涵　□王建丞　□吳可銓