得分

國小數學 1 下單元卷　四、18 以內的減法

一年____班____號　姓名：_____

1 看圖填算式。(每題 6 分，共 18 分)

(1) 還剩下幾個？

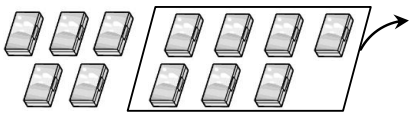

(　　)－(　　)＝(　　)

答：剩下(　　)個

(2) 比多幾隻？



(　　)－(　　)＝(　　)

答：比多(　　)隻

(3) 比少幾個？

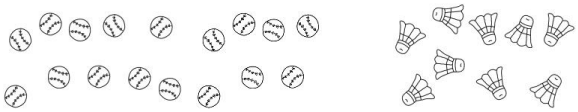

(　　)－(　　)＝(　　)

答：比少(　　)個

2 想一想，填填看。

(每格 3 分，共 18 分)

(1) 11－2＝9	(2) 14－9＝5
11－3＝(　　)	15－9＝(　　)
11－4＝(　　)	16－9＝(　　)
11－5＝(　　)	17－9＝(　　)

3 做做看。(每題 8 分，共 16 分)

(1) 把減數是 7 的心算卡圈起來。

12－7　13－6　15－7　16－9

(2) 把答案是 8 的心算卡圈起來。

15－6　16－8　17－9　18－9

4 寫出做法和答案。

(每題 12 分，共 48 分)

(1) 姐姐有 16 枝鉛筆，妹妹比姐姐少 9 枝，妹妹有幾枝鉛筆？

算式：_____

答：妹妹有(　　)枝鉛筆

(2) 農場裡養了 7 隻牛，羊比牛多 5 隻，農場裡養了幾隻羊？

算式：_____

答：(　　)隻羊

(3) 豆漿店的老闆煮了 16 杯豆漿，賣出 7 杯後，還剩下幾杯豆漿？

算式：_____

答：剩下(　　)杯豆漿

(4) 圖書館熱門書刊有 14 本，有 8 本被借走了，沒被借走的有幾本？

算式：_____

答：(　　)本沒被借走

5 素養題。(8 分)

爸爸開車載全家人去宜蘭的觀光工廠，觀光工廠的停車場可以停 15 輛車，爸爸抵達時，剩下 6 個車位，停車場已經停了幾輛車？

算式：_____

答：(　　)輛車