得分

國小數學 1 下單元卷　五、有多長

一年____班____號　姓名：_____

1 做做看。(每題 8 分，共 16 分)

(1) 品儒和小莉，誰比較高？在□裡畫○。

□　　□

品儒



小莉

(2) 回家的路線有 4 條：最長的在(　　)中畫○，最短的打×。

(　　)　　(　　)

甲　　乙

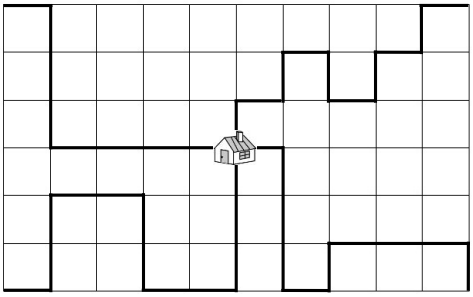

丙　　丁

(　　)　　(　　)

2 看圖填填看。(每題 6 分，共 36 分)

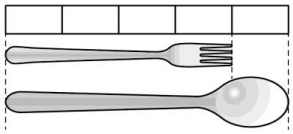

(1) 湯匙和(　　)個□一樣長。

(2) 叉子和(　　)個□一樣長。

(3) 湯匙和叉子合起來和(　　)個□一樣長。

(4) 湯匙的長比叉子多(　　)個□長。

(5) 2 枝叉子接排在一起和(　　)個□一樣長。

(6) 湯刀子和 6 個□一樣長，叉子、湯匙和刀子，哪一個最長？(　　)最長

3 寫出做法和答案。(每題 12 分，共 36 分)

(1) 紅色圍巾和 10 枝鉛筆一樣長，藍色圍巾和 6 枝鉛筆一樣長，藍色圍巾比紅色圍巾少幾枝鉛筆長？

算式：_____

答：少(　　)枝鉛筆長

(2) 一條緞帶和 8 個髮夾一樣長，2 條緞帶接起來，會和幾個髮夾一樣長？

算式：_____

答：和(　　)個髮夾一樣長

(3) 大智的身高和 4 個木箱疊起來一樣高，大智站在 2 個木箱上，合起來會和幾個木箱一樣高？

算式：_____

答：和(　　)個木箱一樣高

4 素養題。(12 分)

哥哥製作動力車參加比賽，第一名的動力車跑了 14 格磁磚，哥哥的動力車跑了 8 格磁磚，哥哥的動力車跑的距離比第一名少了幾格磁磚？

算式：_____

答：少了(　　)格磁磚