得分

國小數學 1 下單元卷　七、認識錢幣

一年____班____號　姓名：_____

1 看圖回答問題。(每個答案 2 分，共 20 分)

翊芬　　奇翰

我的撲滿裡有 50 10 10 10 10 1 1 1 1 1

我的撲滿裡有 50 5 5 5 5 5 5 1 1 1 1 1 1 1 1 1

(1) 翊芬有(　　)個 50、(　　)個 10 和(　　)個 1，合起來是(　　)元。

(2) 奇翰有(　　)個 50、(　　)個 5 和(　　)個 1，合起來是(　　)元。

(3) 誰的錢比較多？多幾元？

(　翊芬，奇翰　)的錢比較多，多(　　)元

2 填填看。(每格 4 分，共 44 分)

(1) 淑娟想買一個 30 元。

① 用 10 來付，要付(　　)個。

② 用 5 來付，要付(　　)個。

③ 用 1 來付，要付(　　)個。

(2) 媽媽想買一顆 100 元。

① 用 100 來付，要付(　　)張。

② 用 50 來付，要付(　　)個。

③ 用 10 來付，要付(　　)個。

(3) 右圖是詠昕存的錢，他一共存了(　　)元。

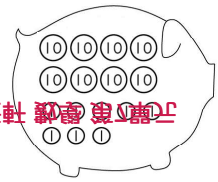

(4) 小印有 10 5 5 5 5 1 1 1 1 1，他可以買下面這些東西嗎？可以買的在(　　)裡畫○，不能買的打×。

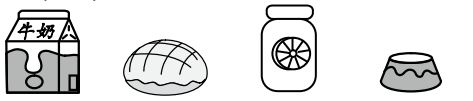

36 元　28 元　42 元　30 元

(　　)　(　　)　(　　)　(　　)

3 圈一圈，做做看。(每題 13 分，共 26 分)

(1) 佳音有 5 個 10，想買一個 35 元，最少要拿出幾個 10 才夠？

10 10 10 10 10

答：最少要拿出(　　)個 10 才夠

(2) 燕宜買一個 58 元，可以怎麼付錢？

10 10 10 10 10 10 10 10 10 10
5 5 5 5 1 1 1 1 1 1 1 1 1 1
5 5 5 5 1 1 1 1 1 1 1 1 1 1
1 1 1 1 1 1 1 1 1 1
5 5 5 5 1 1 1 1 1 1 1 1 1 1

4 素養題。(每題 5 分，共 10 分)

宥詰有 1 個 50、3 個 10 和 8 個 1。



59 元　42 元　30 元　25 元

(1) 宥詰想買一個，要怎麼付錢？畫畫看。

(2) 接第(1)題，宥詰買了一個後，他剩下多少元？畫畫看。

答：剩下(　　)元