康軒校用 數學 第01回

第 1 回

一、50以內的數

一年____班____號

姓名_____

得分

① 看圖填填看。(每格3分，共18分)

(1)

有(　　)瓶，

再買1瓶，共有(　　)瓶，

再買1瓶，共有(　　)瓶。

(2)

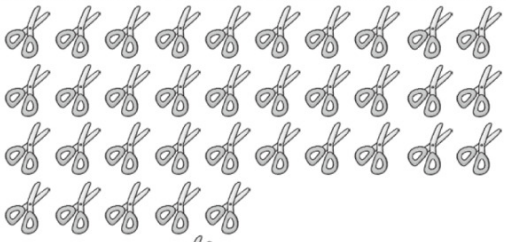

有(　　)把，

賣出1把，剩下(　　)把，

再賣出10把，剩下(　　)把。

② 按照順序填填看。

(每格2分，共28分)

(1) 42 41 ◯ ◯ 38 ◯

(2) ◯ 29 ◯ ◯ 32 33

(3) 36 38 ◯ 42 ◯ ◯

(4) ◯ ◯ 30 35 ◯ 45

(5) 48 38 ◯ ◯ 8

③ 哪一個數比較大？在□裡畫○。(每題3分，共6分)

(1) 43　34

□　□

(2) 32　36

□　□

④ 看圖回答問題。(每個答案4分，共28分)

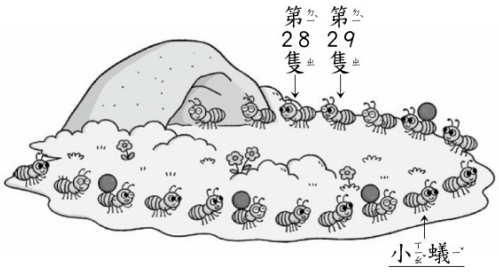

(1)哪些螞蟻身上背著●？

第(　　)隻、第(　　)隻、

第(　　)隻和第(　　)隻。

(2)把在第35隻螞蟻後面的第7隻螞蟻圈起來，牠是排在第(　　)隻。

(3)小蟻排在第(　　)隻。

⑤ 一個表示1顆彈珠，一條表示10顆彈珠。圈圈看，要用多少積木來表示。

(每題5分，共10分)

(1) 43顆彈珠

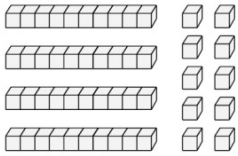

(2) 37顆彈珠

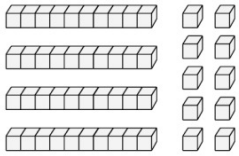

⑥ 想一想，在□裡畫○。

(每題5分，共10分)

(1)兒童遊戲區裡有38組積木，41個小朋友一個人玩1組，積木夠不夠？

□夠　□不夠

(2)手作陶土區有45個座位，有42個小朋友報名手作陶土，手作陶土區的座位能坐得下嗎？

□能　□不能

有著作權・翻印必究