1下

康軒校用 數學 第03回

第 3 回

三、圖形與分類

一年____班____號

姓名_____

得分

① 把移動的那一塊圖形板塗上顏色。(左邊和右邊都要塗呵！)(每題5分，共20分)

(1)

(2)

(3)

(4)

② 下面是一年六班票選最喜愛動物的票數紀錄表，每個小朋友都有1票，看表填填看。(每題5分，共20分)

①號 小狗	②號 貓咪	③號 綿羊	④號 大象
正	正下	丌	正一

(1)得票數最多的是(　　)號。

(2)得票數最少的是(　　)號。

(3)得票數最多的動物比最少的多(　　)票。

(4)大象比小狗多(　　)票。

③ 數一數，下面圖形是用幾塊 排成的？(每題5分，共20分)

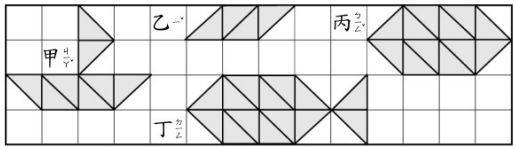

(1)甲：(　　)塊

(2)乙：(　　)塊

(3)丙：(　　)塊

(4)丁：(　　)塊

④ 數一數，填填看。(每格5分，共20分)

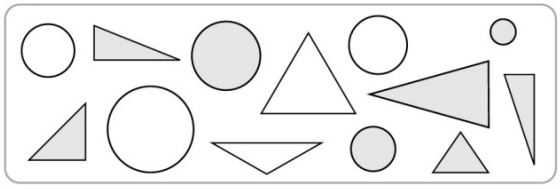

(1)三角形有(　　)個，

圓形有(　　)個。

(2)灰色的圖形有(　　)個，

白色的圖形有(　　)個。

⑤ 這些圖形是從哪裡剪下來的？連連看。

(每條連線5分，共20分)

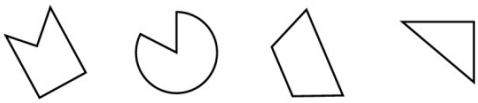

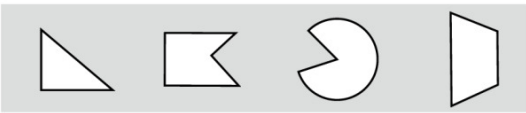

有著作權・翻印必究