康軒校用 數學 第07回

六、100以內的數②

一年____班____號

姓名_____

得分

① 想一想，填填看。

(每格2分，共16分)

(1)寫出4個十位數字是7，且比75小的數。

(　　)、(　　)、(　　)、(　　)

(2)寫出4個比86大，比95小的數。

(　　)、(　　)、(　　)、(　　)

② 數一數，在定位板上寫上數量。(每題5分，共10分)

(1)



十位	個位

(2)

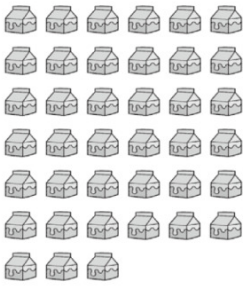

十位	個位

③ 下面是百數表的一部分，想一想，填填看。

(每個答案2分，共20分)

	15				19	
		26	27	28	29	
34	35			38		40
		46		48		

④ 按照順序填填看。

(每格2分，共24分)

(1)	58			61		63
(2)	93	92				88
(3)			63		83	93
(4)			80	70	60	

⑤ 填填看。(每格3分，共18分)

(1)74的十位數字是(　　)，個位數字是(　　)。

(2)個位數字是7，十位數字是6的數是(　　)。

(3)7個十和12個一合起來是(　　)。

(4)10顆雞蛋裝一盒。86顆雞蛋最多可以裝成(　　)盒，還剩下(　　)顆雞蛋。

⑥ 一個表示1，一條表示10，下面的數要用多少表示？圈圈看。

(每題6分，共12分)

(1)85

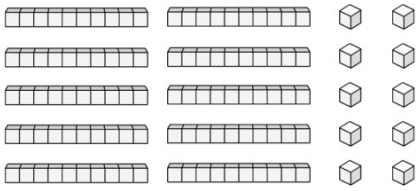

(2)59

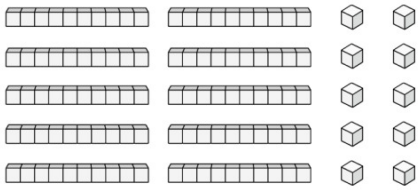

有著作權・翻印必究