康軒校用 數學 第08回

七、認識錢幣

一年____班____號

姓名_____

得分

① 數一數，一共有多少元？在錢數比較多的□裡畫○。

(每個答案4分，共24分)

(1)

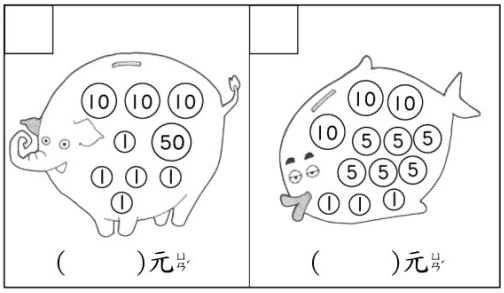

(　　)元　　(　　)元

(2)

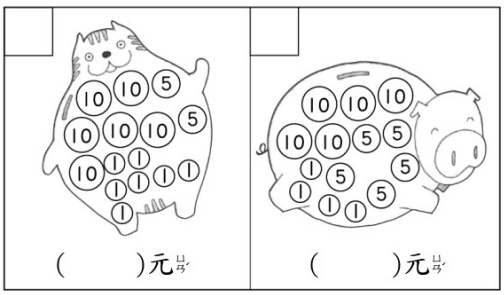

(　　)元　　(　　)元

② 孟霖買了一個 50元，想一想，填填看。(每題5分，共20分)

(1)用 50 來付，要付(　　)個。

(2)用 10 來付，要付(　　)個。

(3)用 5 來付，要付(　　)個。

(4)用 1 來付，要付(　　)個。

③ 怎樣付錢才會剛好？圈圈看。(每題8分，共16分)

(1)



10 10 10 10 10
10 10 10 10 10
1 1 1 1 1
1 1 1 1 1

(2)

10 10 10 10 10
10 10 10 10 10
1 1 1 1 1
1 1 1 1 1

④ 把一樣多的錢連起來。

(每條連線5分，共20分)

5 5 5 5 5 5	10 10 10 10 10 10
50 5 5	50
1 1 1 1 1 1 1 1 1 1 1 1 1 1 1 1 1 1 1 1	10 10 1 1 1 1 1 1 1 1 1 1
10 10 10 5 5 5 5	10 5 1 1 1 1 1

⑤ 回答問題。(每題6分，共12分)

(1)子瑜有7個 10，想買一瓶43元的汽水，最少要拿出幾個 10 才夠？

最少要拿出(　　)個 10

(2)智奇有9個 10，想買一張67元的遊戲卡，最少要拿出幾個 10 才夠？

最少要拿出(　　)個 10

⑥ 用 10 和 1 畫畫看。(8分)

有著作權・翻印必究