康軒校用 數學 第18回

第二次成績考查(配合三次段考)

(範圍：第四單元～第六單元)

一年____班____號

姓名_____

得分

① 看圖填填看。(每格1分，共12分)

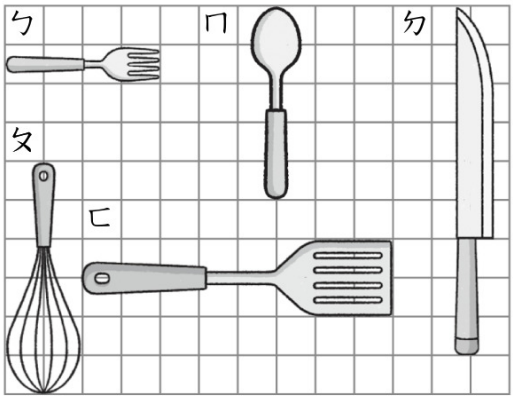

(1)每一種物品的長度分別和幾個□一樣長？

ㄅ：(　　)個□　　ㄆ：(　　)個□

ㄇ：(　　)個□　　ㄈ：(　　)個□

ㄉ：(　　)個□

(2)從長到短排出來：

(　　)→(　　)→(　　)→(　　)→(　　)

(3)ㄅ比ㄉ少(　　)個□。

(4)ㄇ和ㄈ合起來會和(　　)個□一樣長。

② 想一想，填填看。

(每格1分，共8分)

(1)14－8＝(　　)
14－7＝(　　)
14－6＝(　　)
14－5＝(　　)

(2)10－4＝(　　)
11－4＝(　　)
12－4＝(　　)
13－4＝(　　)

③ 按照順序從大到小排排看。

(每格1分，共6分)

(1)77、59、80

□－□－□

(2)93、68、75

□－□－□

④ 一個▢表示1，一條▭表示10，數一數，填填看。

(每格1分，共6分)

(1)

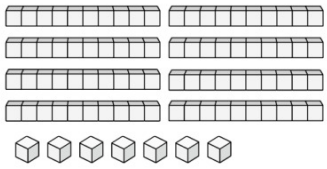

有(　　)個十和(　　)個一，合起來是(　　)。

(2)

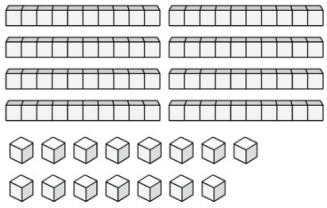

上面積木表示的數是(　　)，它的十位數字是(　　)，個位數字是(　　)。

⑤ 算算看。(每題2分，共12分)

(1)16－7＝(　　)

(2)11－3＝(　　)

(3)15－6＝(　　)

(4)13－9＝(　　)

(5)12－8＝(　　)

(6)14－9＝(　　)

有著作權・翻印必究