第 1 回　1下

一年　　班　　號　姓名

得分

一、50 以內的數

1 按照順序填填看。

(每格2分，共20分)

(1)	37	38			41
(2)	43		41		39
(3)	26	28		32	
(4)	15		25	30	
(5)	7	17		37	

2 先10個、10個圈起來，再數數看。(每題2分，共10分)

(1)  顆

(2)  朵

(3)  枝

(4)  個

(5)  顆

3 數數看，有多少？

(每題2分，共6分)

(1) 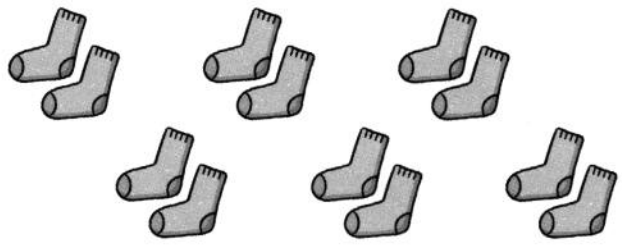

有(　　)隻襪子

(2) 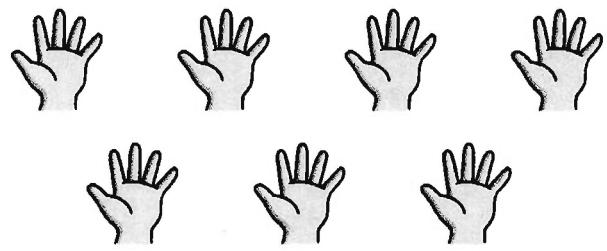

有(　　)根手指頭

(3) 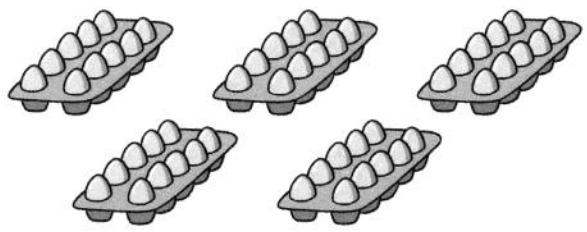

有(　　)顆雞蛋

4 一條 和10個 一樣多，看圖回答問題。

(每個答案2分，共14分)

甲

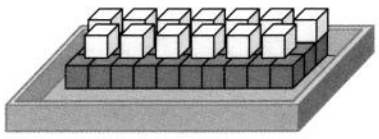

乙

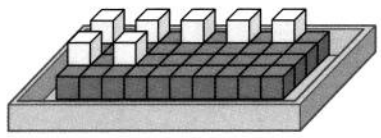

(1)甲盒裡有(　　)條

和(　　)個 ，積木合起來

和(　　)個 一樣多。

(2)乙盒裡有(　　)條

和(　　)個 ，積木合起來

和(　　)個 一樣多。

(3)哪一個盒子裡的積木比較多？(甲盒　，　乙盒)

有著作權・侵害必究

5 一包糖果有10顆，數一數，有多少？(每題2分，共6分)

(1)

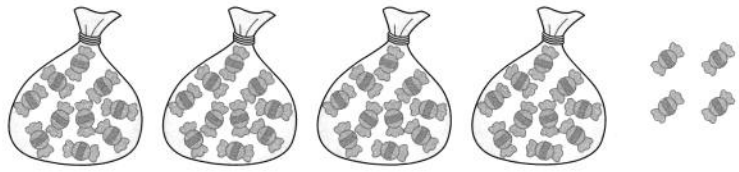

共有(　　)顆糖果

(2)



共有(　　)顆糖果

(3)

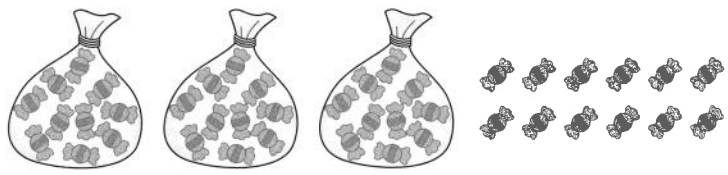

共有(　　)顆糖果

6 想一想，再回答問題。(每個答案3分，共18分)

(1)媽媽買了37顆番茄，爸爸買了40顆番茄，誰買的番茄比較多？

(　媽媽　，　爸爸　)

(2)老師準備了35個果凍，要分給38個小朋友，一個人分1個，果凍夠不夠？

(　夠　，　不夠　)

(3)排隊買棉花糖。子坡排在第45個，子青排在第50個，誰會先買到棉花糖？

(　子坡　，　子青　)

(4)排隊等公車。文朋排在第40個，他的前面排了(　　)個人。

①排在他前面的那一個人，是排在第(　　)個。

②排在他後面的那一個人，是排在第(　　)個。

7 把比較大的數或最大的數塗上顏色。(每題2分，共8分)

(1)

37　34

(2)

40　50　30

(3)

39　43

(4)

35　29　38

8 看圖回答問題。(每個答案3分，共18分)

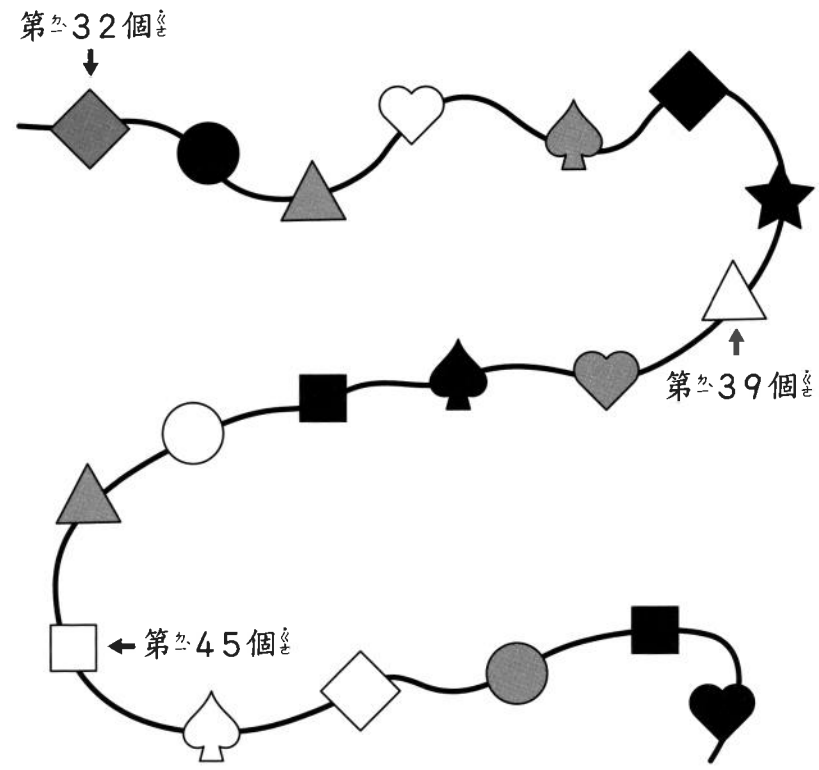

(1)第35個是哪一個圖形？

(　♥　，　♡　，　♠　，　♤　)

(2)第42個是哪一個圖形？

(　♠　，　♤　，　■　，　◇　)

(3)第49個是哪一個圖形？

(　◇　，　■　，　♡　，　♥　)

(4)★排在第(　　)個。

①排在它後面的第6個圖形，是排在第(　　)個。

②排在它前面的第4個圖形，是排在第(　　)個。

有著作權・侵害必究