一、50 以內的數

得分

1 看圖數數一數，填填看。

(每格2分，共12分)

(1)



共有(　　)張色紙

加上10張，共有(　　)張；

再加上10張，共有(　　)張。

(2)

共有(　　)枝鉛筆

拿走10枝，剩下(　　)枝；

再拿走10枝，剩下(　　)枝。

2 看圖數數一數，回答問題。

(每題2分，共10分)

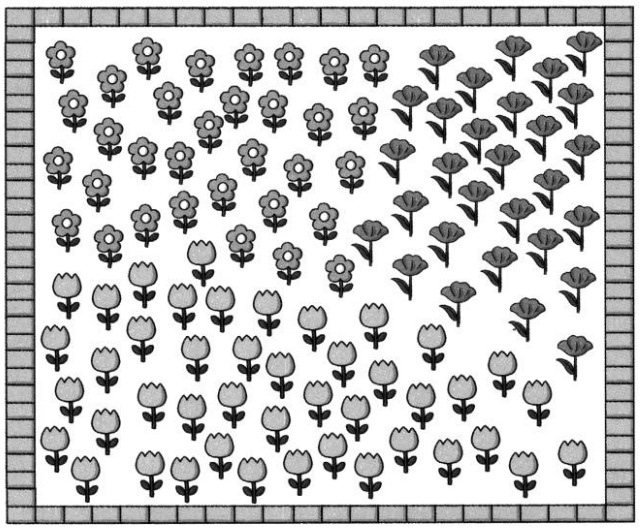

(1) 有(　　)朵。

(2) 有(　　)朵。

(3) 有(　　)朵。

(4)哪一種花最多？(， ，)

(5)哪一種花最少？(， ，)

3 按照順序填填看。

(每格1分，共10分)

(1) 38 39 ☐ 41 ☐

(2) 33 32 31 ☐ ☐

(3) 22 24 ☐ 28 ☐

(4) 25 ☐ 35 40 ☐

(5) 10 ☐ 30 40 ☐

4 一個 表示1個布丁，一條 表示10個布丁，做做看。(每小題3分，共12分)

(1)表示幾個布丁？

①

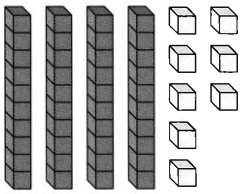

表示(　　)個

②

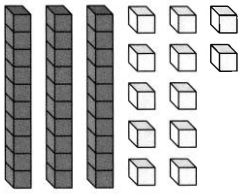

表示(　　)個

(2)圈圈看。

①37個布丁。

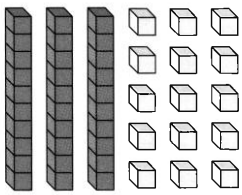

②40個布丁。

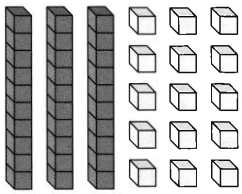

5 把比較大的數圈起來。

(每題2分，共8分)

(1) 42 47

(2) 29 36

(3) 40 35

(4) 48 50

有著作權・侵害必究

6 想一想，再圈圈看。
(每題2分，共6分)

(1)威浩有34張球員卡，
成嘉有41張球員卡，
誰的球員卡比較多？
(威浩 ， 成嘉)

(2)小寶買了35個甜甜圈，要分給33個同學，一個人分1個，甜甜圈夠不夠？
(夠 ， 不夠)

(3)遊園列車一趟可以載38個人，有42個人在排隊，可以一趟全部載完嗎？
(可以 ， 不可以)

7 看圖回答問題。
(每個答案3分，共18分)

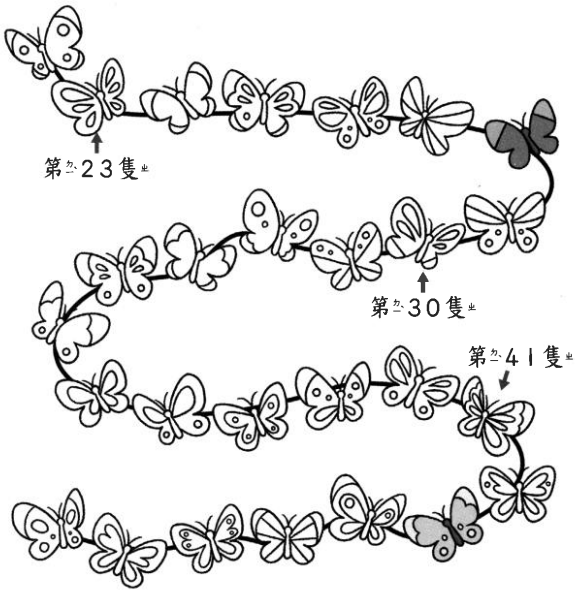

(1)把第35隻蝴蝶塗上灰色。

(2)把第46隻蝴蝶塗上藍色。

(3) 排在第(　　)隻，
排在牠後面的第3隻蝴蝶，
是排在第(　　)隻。

(4) 排在第(　　)隻，
排在牠前面的第6隻蝴蝶，
是排在第(　　)隻。

8 數一數，有多少？在比較多的□裡打√。
(每個答案2分，共18分)

(1)

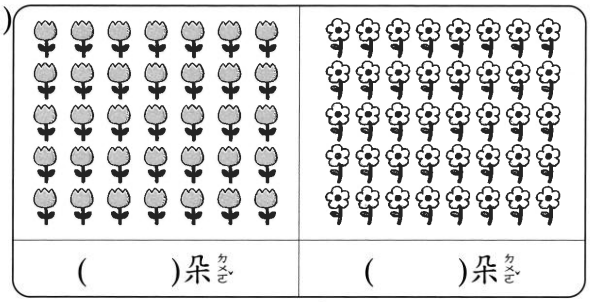

(　　)朵　　(　　)朵
□　　□

(2)

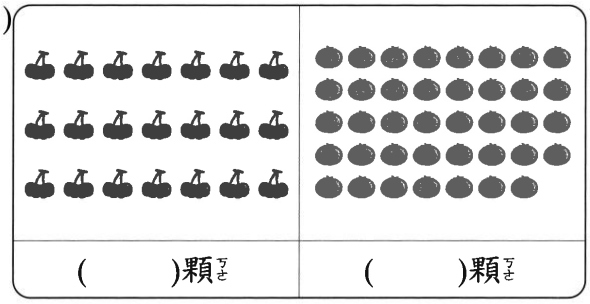

(　　)顆　　(　　)顆
□　　□

(3)

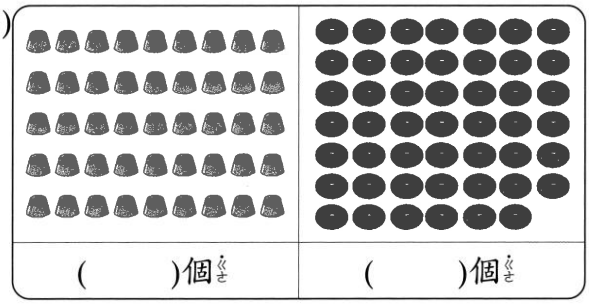

(　　)個　　(　　)個
□　　□

9 填填看。(每個答案2分，共6分)

(1)球員簽名卡限量50套，每個人只能買1套，輝恩排在第46個，他可以買到球員簽名卡嗎？
(可以 ， 不可以)

(2)排隊買電影票，佑嘉排在第37個。

①排在他前面的第3個人，是排在第(　　)個。

②排在他後面的第5個人，是排在第(　　)個。

有著作權・侵害必究