康軒門市 數學 第03回 (1/2)

一年 班 號 姓名

第 3 回

二、18 以內的加法

1下

得分

合起來是多少？用算式記記看。(每題4分，共8分)

(1)



(　　)+(　　)=(　　)

答：(　　)個蘋果

(2)



(　　)+(　　)=(　　)

答：(　　)條魚

算算看。(每題2分，共16分)

(1)6＋8＝(　　)

(2)7＋5＝(　　)

(3)9＋2＝(　　)

(4)8＋8＝(　　)

(5)4＋7＝(　　)

(6)3＋9＝(　　)

(7)8＋4＝(　　)

(8)5＋6＝(　　)

想一想，填填看。(每格1分，共20分)

(1)4＋4＝8
4＋5＝9
4＋6＝10
4＋7＝(　　)
4＋8＝(　　)
4＋9＝(　　)

(2)4＋8＝12
5＋8＝13
6＋8＝14
7＋8＝(　　)
8＋8＝(　　)
9＋8＝(　　)

(3)6＋7＝13
5＋7＝(　　)
4＋7＝(　　)
3＋7＝(　　)

(4)7＋9＝16
7＋8＝(　　)
7＋7＝(　　)
7＋6＝(　　)

(5)5＋9＝14
6＋8＝(　　)
7＋7＝(　　)
8＋6＝(　　)

(6)8＋4＝12
7＋5＝(　　)
6＋6＝(　　)
5＋7＝(　　)

(7)4＋9＝13
9＋4＝(　　)

(8)8＋7＝15
7＋8＝(　　)

把答案一樣的算式連起來。(每條連線2分，共12分)

2＋8	9＋5
4＋7	4＋6
6＋9	8＋8
7＋7	3＋8
8＋5	6＋7
9＋7	8＋7

有著作權，侵害必究

5 想一想，再圈圈看。

(每題2分，共4分)

(1)哪一邊櫃子裡的書比較多？

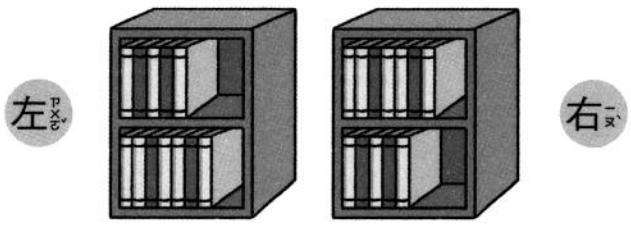

(左邊 ， 右邊 ， 一樣多)

(2)哪一邊的點數比較多？

(左邊 ， 右邊 ， 一樣多)

6 寫出做法和答案。

(每題5分，共40分)

(1)冰箱裡有3瓶蘋果汁和9瓶柳橙汁，合起來有幾瓶果汁？

算式：

答：(　　)瓶果汁

(2)桶子裡有4顆球，又放進8顆球後，現在桶子裡有幾顆球？

算式：

答：(　　)顆球

(3)農場裡有6隻公牛和7隻母牛，一共有幾隻牛？

算式：

答：(　　)隻牛

(4)小齊有4張榮譽卡，老師再給他7張，小齊現在有幾張榮譽卡？

算式：

答：(　　)張榮譽卡

(5)一袋包子有7個，爸爸買了2袋，一共有幾個包子？

算式：

答：(　　)個包子

(6)公園裡有5個人，又來了6個人，現在公園裡有幾個人？

算式：

答：(　　)個人

(7)籃子裡有5個紅蘋果和9個青蘋果，合起來有幾個蘋果？

算式：

答：(　　)個蘋果

(8)一籠蒸餃有6個，媽媽點了2籠，一共有幾個蒸餃？

算式：

答：(　　)個蒸餃

有著作權・侵害必究