一年 班 號 姓名

得分

第 4 回 1下

二、18以內的加法

算算看。(每題2分，共16分)

(1)6＋6＝(　　)　(2)4＋9＝(　　)

(3)7＋8＝(　　)　(4)7＋6＝(　　)

(5)9＋5＝(　　)　(6)8＋3＝(　　)

(7)7＋7＝(　　)　(8)9＋9＝(　　)

填填看。(每格2分，共12分)

(1)

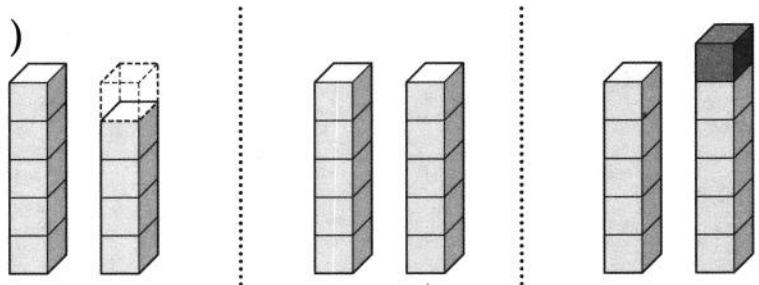

5＋4＝(　　)　5＋5＝10　5＋6＝(　　)

(2)

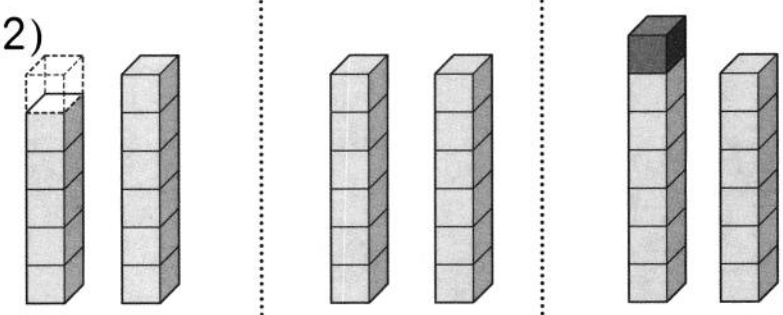

5＋6＝(　　)　6＋6＝[redacted]　7＋6＝(　　)

(3)7＋9＝16
9＋7＝(　　)

(4)8＋4＝12
4＋8＝(　　)

合起來是多少？用算式記記看。(每題4分，共8分)

(1)花園裡有9朵、5朵和3朵，和合起來有幾朵花？

算式：(　　)＋(　　)＝(　　)

答：(　　)朵花

(2)書架上有3本、9本和4本，和合起來有幾本書？

算式：(　　)＋(　　)＝(　　)

答：(　　)本書

想一想，填填看。(每格1分，共10分)

(1)

7＋4＝11 → 7＋5＝(　　) → 7＋6＝(　　) → 7＋7＝(　　) → 7＋8＝(　　) → 7＋9＝(　　)

(2)

8＋8＝16 → 7＋8＝(　　) → 6＋8＝(　　) → 5＋8＝(　　) → 4＋8＝(　　) → 3＋8＝(　　)

有著作權・侵害必究

[redacted]看圖回答問題。

(每題6分，共12分)

甲　　乙　　丙

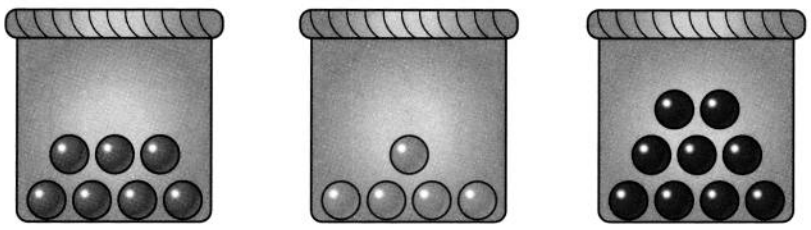

(1)甲桶和乙桶裡共有幾顆球？

算式：

答：(　　)顆球

(2)甲桶和丙桶裡共有幾顆球？

算式：

答：(　　)顆球

6 寫出做法和答案。

(每題6分，共42分)

(1)老師買了7枝藍筆和8枝紅筆，一共有幾枝筆？

算式：

答：(　　)枝筆

(2)樹上有3隻小鳥，又飛來9隻後，現在樹上有幾隻小鳥？

算式：

答：(　　)隻小鳥

(3)東華有5顆彈珠，子涵又給他6顆，東華現在有幾顆彈珠？

算式：

答：(　　)顆彈珠

(4)一包糖果有9顆，2包共有幾顆糖果？

算式：

答：(　　)顆糖果

(5)操場上有8個男生和9個女生，一共有幾個人？

算式：

答：(　　)個人

(6)弟弟有7張貼紙，哥哥再給他4張，弟弟現在有幾張貼紙？

算式：

答：(　　)張貼紙

(7)一盒雞蛋有8顆，媽媽買了2盒，一共有幾顆雞蛋？

算式：

答：(　　)顆雞蛋

有著作權・侵害必究