康軒門市 數學 第06回 (1/2)

三、圖形與分類

得分

1 移動了哪一塊圖形板？

(每題3分，共12分)

(1)



移動了(　　)號圖形板

(2)



移動了(　　)號圖形板

(3)



移動了(　　)號圖形板

(4)



移動了(　　)號圖形板

2 把下面6個小朋友跳繩的紀錄和次數連起來。

(每條連線3分，共18分)

正正正正	10次
正正正正丅	12次
正正正下	18次
正正	19次
正正丅	20次
正正正下	22次

3 這些圖形板剛好可以放在哪裡？連連看。

(每條連線3分，共12分)

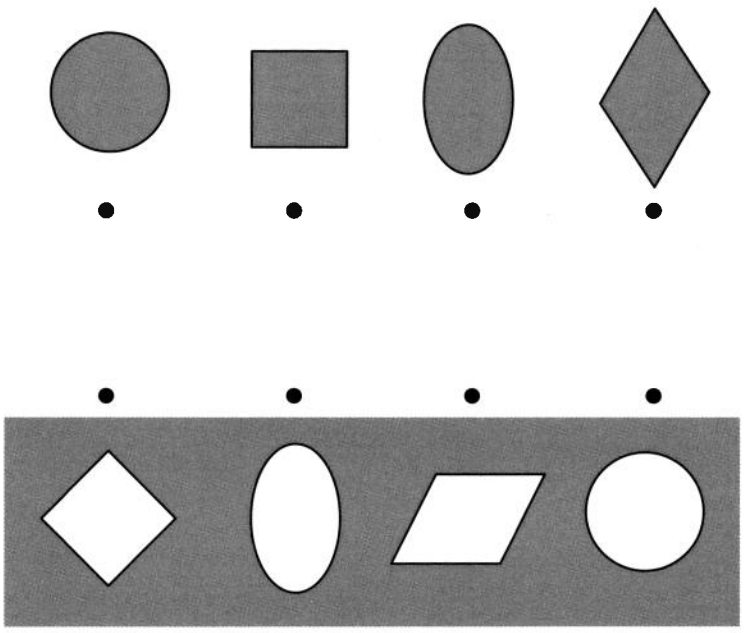

4 把下面的小朋友分成兩組，可以怎麼分？

(每題6分，共18分)



(1)分法1：用(　　)分。

	(　　)個人
	(　　)個人

(2)分法2：用(　　)分。

	(　　)個人
	(　　)個人

(3)分法3：用(　　)分。

	(　　)個人
	(　　)個人

有著作權・侵害必究

5 每組圖形的形狀大小都一樣嗎？一樣的畫○，不一樣的打×。(每題2分，共12分)

(1)



(　　)

(2)

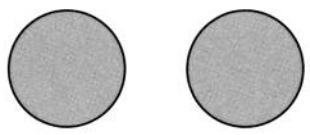

(　　)

(3)

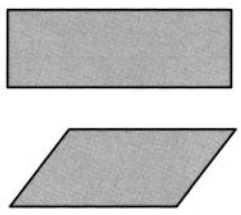

(　　)

(4)



(　　)

(5)



(　　)

(6)



(　　)

6 數數看，各是用幾塊 拼成的？(每題2分，共12分)

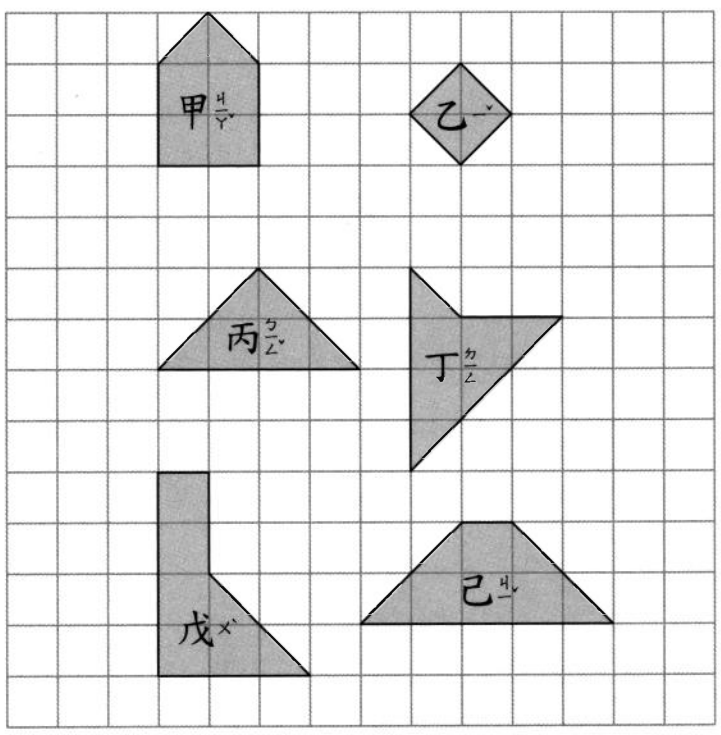

(1)甲：(　　)塊　(2)乙：(　　)塊

(3)丙：(　　)塊　(4)丁：(　　)塊

(5)戊：(　　)塊　(6)己：(　　)塊

7 下面是南山國小一年級學生近視人數的紀錄，看圖回答問題。(每個答案1分，共6分)

(一個 表示有1個人近視)

甲班	乙班	丙班	丁班

(1)每一班近視的人數：

甲班	乙班	丙班	丁班
(　　)人	(　　)人	(　　)人	(　　)人

(2)哪一班近視的人數最多？

(甲，乙，丙，丁)班

(3)哪一班近視的人數最少？

(甲，乙，丙，丁)班

8 下面是玩夾娃娃遊戲的紀錄表，看表回答問題。

(每個答案1分，共10分)

(○是夾中，×是沒夾中)

小寶	○	○	×	×	○	×	×	○	○	○
宥欣	×	×	○	×	○	×	×	○	×	○
建宏	×	○	×	○	×	×	○	○	○	×
虹怡	○	○	○	×	○	○	○	○	×	×

(1)每個人夾中幾次？

小寶	宥欣	建宏	虹怡
正一			
(　　)次	(　　)次	(　　)次	(　　)次

(2)誰夾中的次數最多？

(小寶，宥欣，建宏，虹怡)

(3)誰夾中的次數最少？

(小寶，宥欣，建宏，虹怡)

(4)小寶和建宏，誰夾中的次數比較多？(小寶，建宏)

有著作權・侵害必究