一年　班　號　姓名

第 7 回　1下

四、18以內的減法

得分

1 還剩下多少？用算式記記看。(每題4分，共8分)

(1)

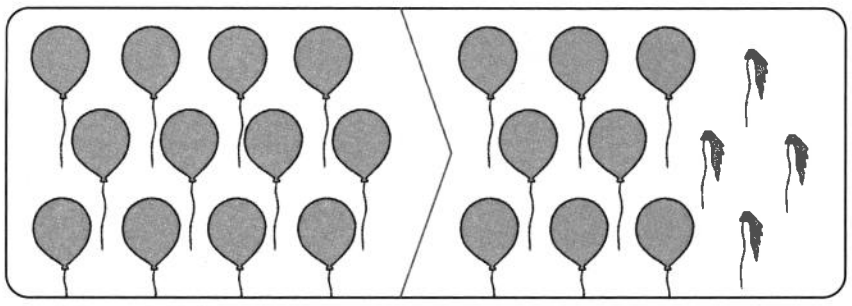

(　　)－(　　)＝(　　)

答：剩下(　　)個氣球

(2)



(　　)－(　　)＝(　　)

答：剩下(　　)個蘋果

2 算算看。(每題2分，共16分)

(1) 11－2＝(　　)　(2) 15－8＝(　　)

(3) 12－7＝(　　)　(4) 14－9＝(　　)

(5) 17－8＝(　　)　(6) 15－6＝(　　)

(7) 16－7＝(　　)　(8) 18－9＝(　　)

3 看圖回答問題。(每題4分，共16分)

(1) 比多幾朵？



算式：

答：多(　　)朵

(2) 比少幾隻？

算式：

答：少(　　)隻

(3) 比少幾顆？



算式：

答：少(　　)顆

(4) 比多幾個？



算式：

答：多(　　)個

有著作權・侵害必究

4 把算式和答案連起來。

(每條連線2分，共16分)

18－9	6
13－7	9
12－8	4
11－9	8
16－9	2
11－6	7
12－4	5
11－8	3

5 想一想，填填看。

(每格1分，共8分)

(1)11－3＝8
11－4＝7
11－5＝6
11－6＝(　　)
11－7＝(　　)
11－8＝(　　)
11－9＝(　　)

(2)15－3＝12
15－4＝11
15－5＝10
15－6＝(　　)
15－7＝(　　)
15－8＝(　　)
15－9＝(　　)

6 寫出做法和答案。

(每題6分，共36分)

(1)媽媽煮了17顆水餃，爸爸吃了8顆，還剩下幾顆水餃？

算式：

答：剩下(　　)顆水餃

(2)維中有4顆彈珠，俊麟比維中多7顆彈珠，俊麟有幾顆彈珠？

算式：

答：(　　)顆彈珠

(3)小坡和秉庭一共摺了12隻紙鶴，有5隻是小坡摺的，秉庭摺了幾隻紙鶴？

算式：

答：秉庭摺了(　　)隻紙鶴

(4)桌上有15條緞帶，有7條是紅色，剩下都是藍色，藍色緞帶有幾條？

算式：

答：(　　)條藍色緞帶

(5)妹妹有12張色紙，哥哥比妹妹少3張色紙，哥哥有幾張色紙？

算式：

答：(　　)張色紙

(6)同樂會準備了16杯奶茶和9杯紅茶，紅茶比奶茶少幾杯？

算式：

答：紅茶少(　　)杯

有著作權・侵害必究