一年 班 號 姓名

得分

第 9 回

1下

五、有多長

1 看圖比一比，在□裡打√。
(每題4分，共12分)

(1)哪一條彩帶比較長？

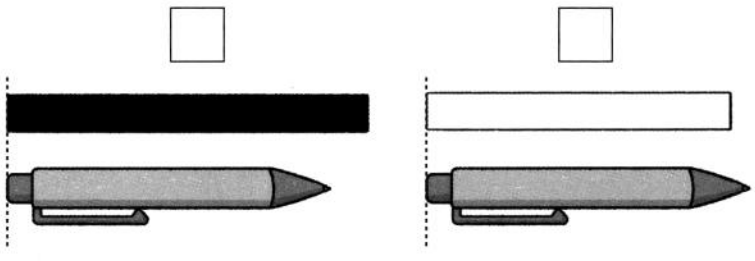

(2)哪一根棍子比較短？



(3)書的哪一邊比較長？

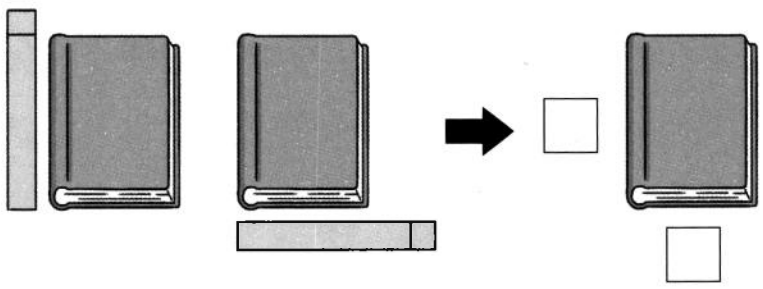

2 看圖回答問題。
(每題4分，共8分)

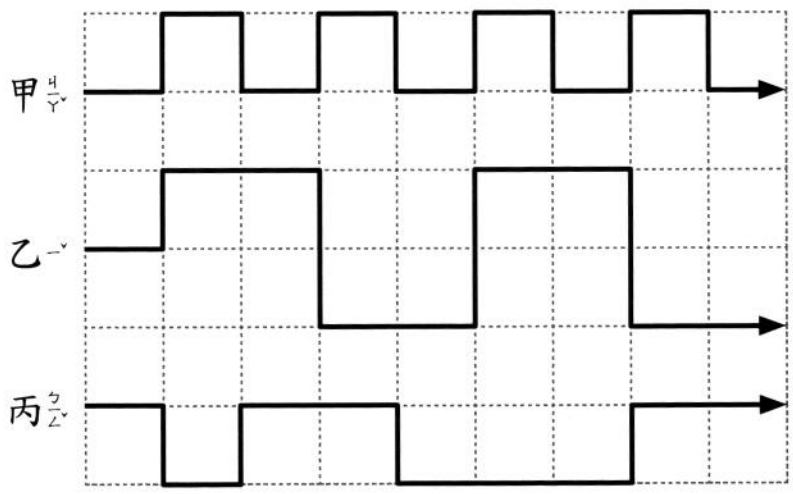

(1)哪一條路線最長？
(甲，乙，丙)路線

(2)哪一條路線最短？
(甲，乙，丙)路線

3 看圖填填看。(每格4分，共40分)

(1)

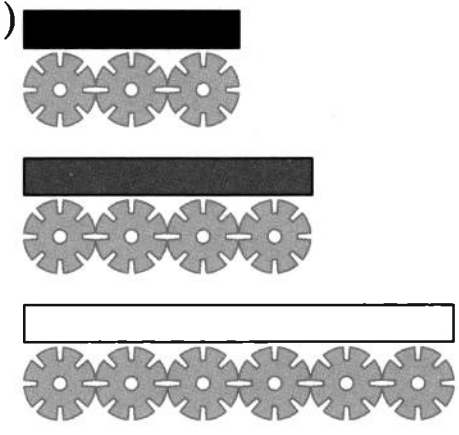

①白色緞帶和(　　)個花片一樣長。

②黑色緞帶和(　　)個花片一樣長。

③灰色緞帶和(　　)個花片一樣長。

④灰色和白色緞帶接起來，和(　　)個花片一樣長。

⑤黑色和灰色緞帶接起來，和(　　)個花片一樣長。

⑥黑色和白色緞帶接起來，和(　　)個花片一樣長。

(2)

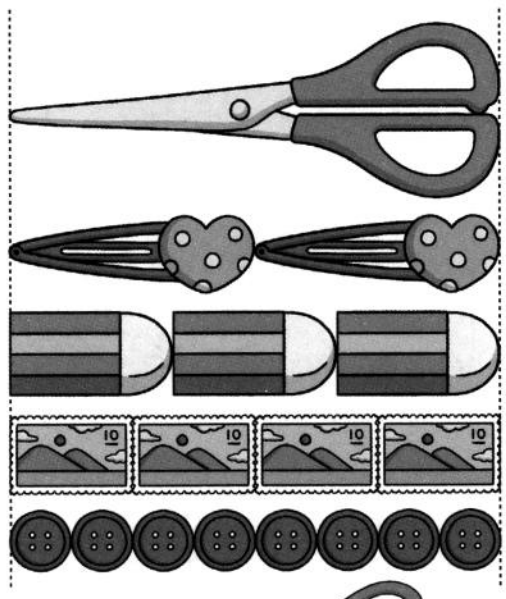

①一把 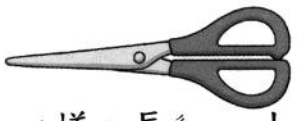 和(　　)個 一樣長，也和(　　)個 一樣長。

②一個 和(　　)張 一樣長，也和(　　)個 一樣長。

有著作權・侵害必究

4 寫出做法和答案。

(每小題5分，共20分)

(1)

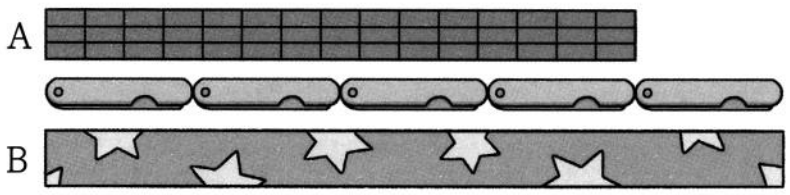

①A、B兩條緞帶接起來，和幾把刀片一樣長？

算式：

答：和(　　)把刀片一樣長

②A緞帶比B緞帶少幾把刀片長？

算式：

答：A緞帶少(　　)把刀片長

(2)

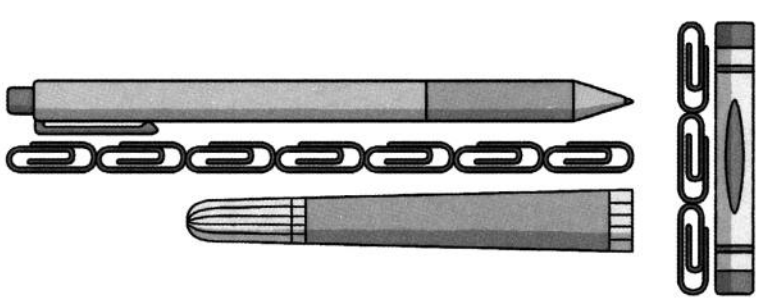

①原子筆和彩色筆接排起來，和幾個迴紋針一樣長？

算式：

答：和(　　)個迴紋針一樣長

②蠟筆和彩色筆接排起來，和幾個迴紋針一樣長？

算式：

答：和(　　)個迴紋針一樣長

5 看圖算算看。(每題5分，共20分)

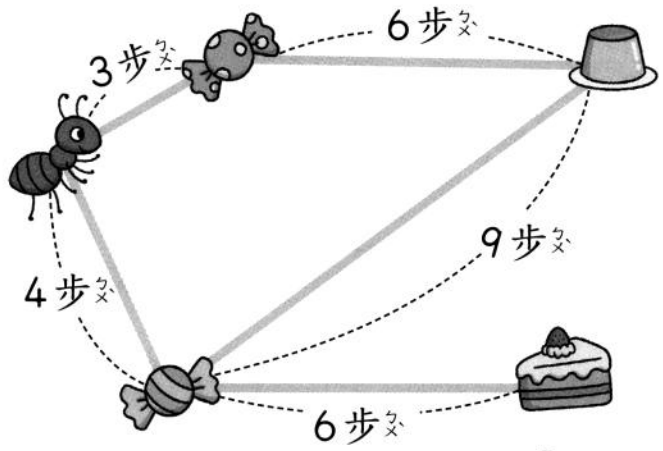

(1)螞蟻昨天經過 再到 ，共走了幾步？

算式：

答：走(　　)步

(2)螞蟻今天經過 再到 ，共走了幾步？

算式：

答：走(　　)步

(3)接第(1)、(2)題，今天比昨天多走幾步？

算式：

答：今天多走(　　)步

(4)螞蟻明天想要經過 再到 ，共要走幾步？

算式：

答：走(　　)步

有著作權・侵害必究