一下 第10回 二年 班 號 姓名

得分

五、有多長

1 看圖比一比，在□裡打√。

（每題4分，共20分）

(1)哪一條繩子最短？

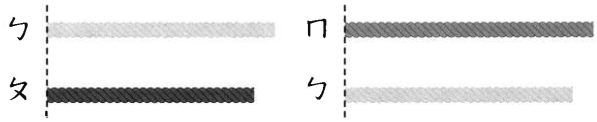

□ ㄅ繩　□ ㄆ繩　□ ㄇ繩

(2)誰最高？



□ 小宇　□ 方方　□ 奇奇

(3)哪一枝筆比較長？

□ 鉛筆　□ 毛筆

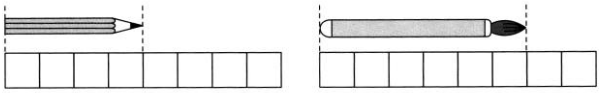

(4)哪一條彩帶比較長？



□　□

(5)哪一根棍子比較短？



□　□

2 看圖回答問題。

（每個答案3分，共33分）

(1)

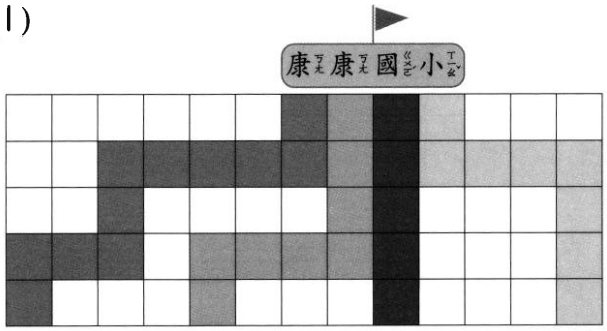

小玉　小文　小如　小安

①誰走的路線最長？

(小玉，小文，小如，小安)

②誰走的路線最短？

(小玉，小文，小如，小安)

③(　　)和(　　)走的路線一樣長。

(2)

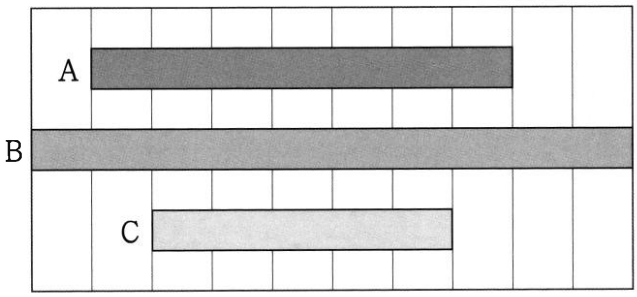

①A緞帶和(　　)格一樣長，

B緞帶和(　　)格一樣長，

C緞帶和(　　)格一樣長。

②哪一條緞帶最長？

(A ， B ， C)緞帶

③哪一條緞帶最短？

(A ， B ， C)緞帶

④B緞帶的長度比C緞帶長度多(　　)格長。

⑤C緞帶的長度比A緞帶長度少(　　)格長。

有著作權・侵害必究

3 看圖填填看。(每格3分，共27分)

(1)

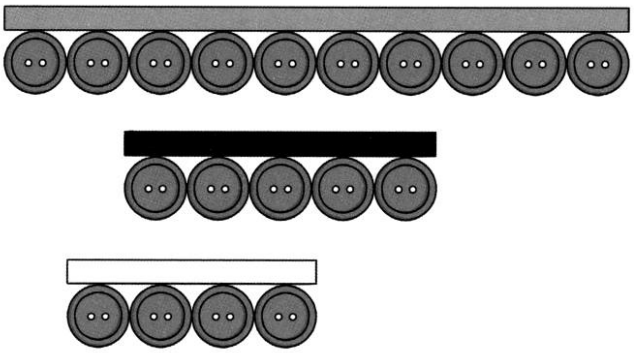

①灰色彩帶和(　　)個鈕扣一樣長。

②黑色彩帶和(　　)個鈕扣一樣長。

③白色彩帶和(　　)個鈕扣一樣長。

④黑色和白色彩帶接起來，和(　　)個鈕扣一樣長。

⑤灰色彩帶比白色彩帶多(　　)個鈕扣長。

⑥黑色彩帶比灰色彩帶少(　　)個鈕扣長。

(2)

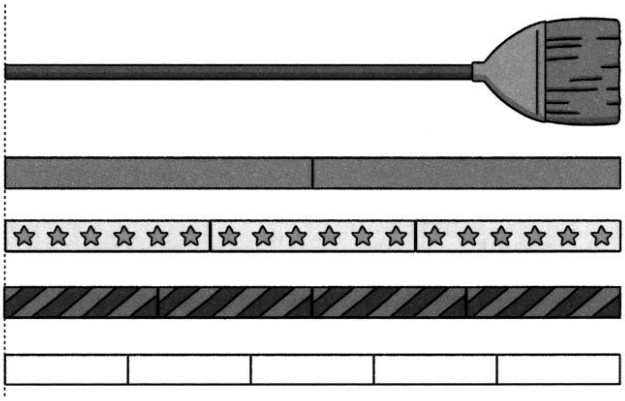

①一枝掃把和(　　)條星星彩帶一樣長，也和(　　)條白色彩帶一樣長。

②一條灰色彩帶和(　　)條斜線彩帶一樣長。

4 寫出做法和答案。

(每小題5分，共20分)

(1)



①乙繩和丙繩接起來，和幾個橡皮擦一樣長？

算式：

答：和(　　)個橡皮擦一樣長

②甲繩比乙繩多幾個橡皮擦長？

算式：

答：甲繩多(　　)個橡皮擦長

(2)

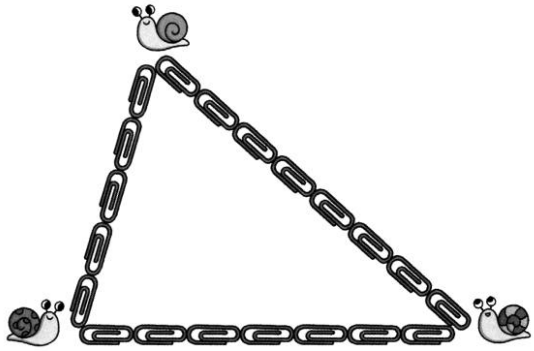

①先去找，再去找，共要走幾個迴紋針長？

算式：

答：走(　　)個迴紋針長

②先去找，再去找，比直接去找，要多走幾個迴紋針長？

算式：

答：多走(　　)個迴紋針長

有著作權・侵害必究