一下 第11回

學習成果評量(期中)

年 班 號 姓名

得分

1 算算看。(每題2分，共16分)

(1)8＋4＝(　　)　(2)5＋6＝(　　)

(3)6＋9＝(　　)　(4)8＋8＝(　　)

(5)15－7＝(　　)　(6)12－6＝(　　)

(7)13－8＝(　　)　(8)17－9＝(　　)

2 塗塗看。(每個答案2分，共12分)

(1)哪些算式卡的答案是12？

9＋3　8＋3　4＋8　5＋7

(2)哪些算式卡的答案是6？

12－6　13－7　14－5　15－9

3 想一想，再回答問題。(每題3分，共6分)

(1)老師準備了40塊蛋糕，分給32個人，一個人分1塊，蛋糕夠不夠？(　夠，不夠　)

(2)教室裡有28張椅子，全班31個小朋友一個人坐1張，椅子夠不夠？(　夠，不夠　)

4 數數看，各要用幾塊 排成？(每題4分，共8分)

(1)(　　)塊

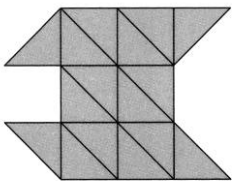

(2)(　　)塊

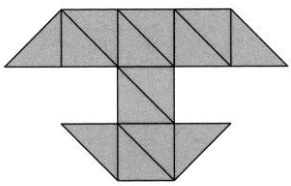

5 看圖回答問題。(每題2分，共6分)

(1)哪一條緞帶比較長？

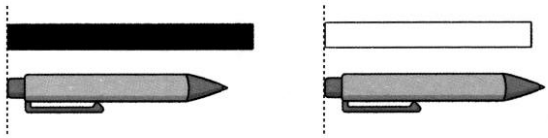

(　黑色，白色　)緞帶比較長

(2)哪一條圍巾比較短？



(　條紋，點點　)圍巾比較短

(3)哪一條紙膠帶最長？

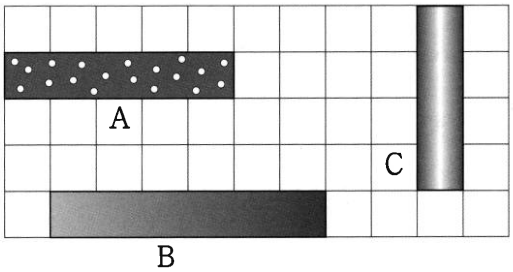

(　A，B，C　)紙膠帶最長

6 先完成表格，再回答問題。(每格1分，共10分)



圓形	正方形	三角形	長方形
正 丅			
(　　)個	(　　)個	(　　)個	(　　)個

(1)哪一種圖形的數量最多？

(　　)形

(2)哪一種圖形的數量最少？

(　　)形

(3)正方形的數量比三角形少幾個？少(　　)個

有著作權・侵害必究

7 寫出做法和答案。

(每題4分，共20分)

(1)雅珍昨天算了9題數學題，今天又算了8題，兩天一共算了幾題數學題？

算式：

答：(　　)題數學題

(2)小坡從教室門口到洗手臺要走5步，走到廁所要走12步，到洗手臺比到廁所要少走幾步？

算式：

答：到洗手臺少走(　　)步

(3)哥哥有12張貼紙，弟弟比哥哥少9張貼紙，弟弟有幾張貼紙？

算式：

答：(　　)張貼紙

(4)文朋吃了9顆水餃，威皓吃了4顆水餃，合起來是吃了幾顆水餃？

算式：

答：(　　)顆水餃

(5)教室裡有15個人，男生有8個人，女生有幾個人？

算式：

答：女生有(　　)個人

8 看圖填填看。(每題2分，共10分)

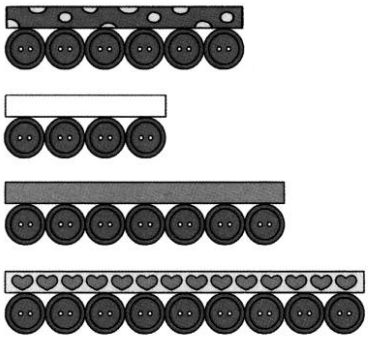

(1)灰色紙條和(　　)個鈕扣一樣長。

(2)愛心紙條和(　　)個鈕扣一樣長。

(3)點點紙條和(　　)個鈕扣一樣長。

(4)灰色紙條和點點紙條接起來，和(　　)個鈕扣一樣長。

(5)白色紙條比愛心紙條少(　　)個鈕扣長。

9 素養題。(每個答案1分，共12分)

小熊郵差要幫大家送信。

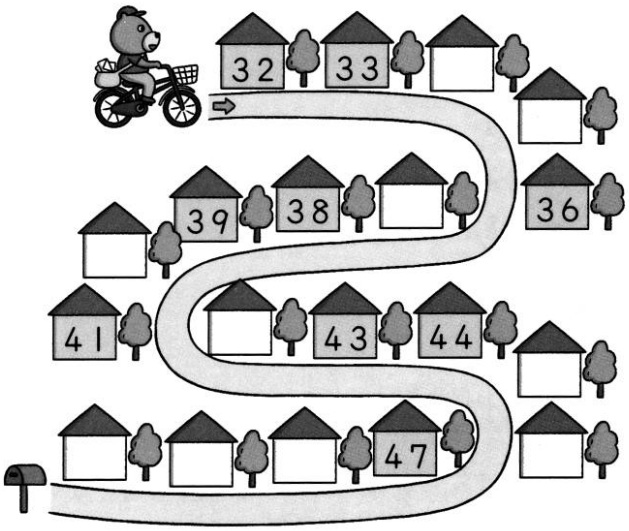

(1)每棟房子是幾號？按照順序填填看。

(2)37號和46號，小熊郵差會先經過幾號？(　　)號

(3)這條路的最後一棟房子是幾號？(　　)號

有著作權・侵害必究