康軒門市 數學 第12回 (1/2)

一年　　班　　號　姓名

第 12 回　一下

學習成果評量(期中)

得分

1 看圖填填看。(每格2分，共6分)

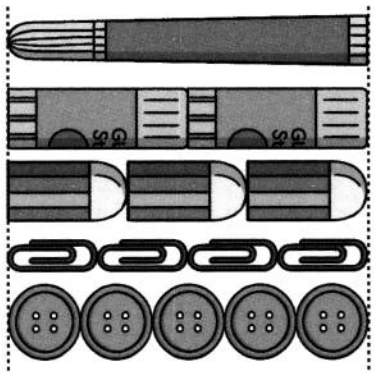

(1)一枝彩色筆和(　　)個橡皮擦一樣長，也和(　　)個鈕扣一樣長。

(2)一個口紅膠和(　　)個迴紋針一樣長。

2 填填看。(每格1分，共15分)

(1) 9＋7＝(　　)　　(2) 8＋8＝(　　)

(3) 5＋9＝(　　)　　(4) 10＋4＝(　　)

(5)

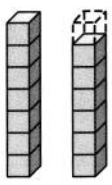

7＋6＝(　)

(6)

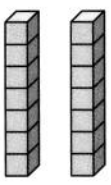

7＋7＝(　)

(7)

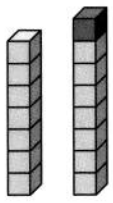

7＋8＝(　)

(8) 5＋8＝(　　)
8＋5＝(　　)

(9) 3＋9＝(　　)
9＋3＝(　　)

(10) 11－7＝4
11－6＝(　　)
11－5＝(　　)

(11) 13－8＝5
12－8＝(　　)
11－8＝(　　)

3 先完成表格，再回答問題。(每個答案2分，共12分)

			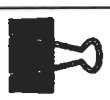
正丅	正	正正	正丅
(　　)個	(　　)個	(　　)個	(　　)個

(1)哪一種文具的數量最多？

(　 　， 　，　， 　)

(2)哪一種文具的數量最少？

(　 　， 　，　， 　)

4 在□裡打√。(每題3分，共6分)

(1)哪一朵花比較高？



(2)哪一輛車比較長？



5 看圖算算看。(每題4分，共12分)

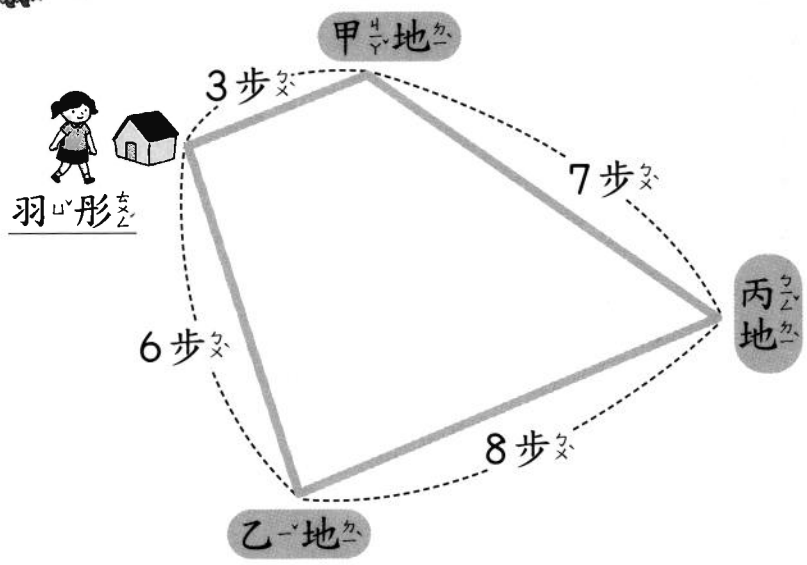

(1)從羽彤家經過甲地，再走到丙地，一共要走幾步？

算式：

答：走(　　)步

(2)從羽彤家經過乙地，再走到丙地，一共要走幾步？

算式：

答：走(　　)步

(3)從羽彤家走到丙地，中間經過甲地比經過乙地要少走幾步？

算式：

答：少走(　　)步

有著作權・侵害必究

6 寫出做法和答案。

(每題5分，共25分)

(1)一包色紙有8張，弟弟買了2包，一共有幾張色紙？

算式：

答：(　　)張色紙

(2)爸爸吃了17顆櫻桃，妹妹比爸爸少吃9顆，妹妹吃了幾顆櫻桃？

算式：

答：(　　)顆櫻桃

(3)一包麻糬有18個，有9個是芝麻口味，剩下都是花生口味，花生口味有幾個？

算式：

答：(　　)個花生口味

(4)對摺後的紙條和6個花片一樣長，原來的紙條和幾個花片一樣長？

算式：

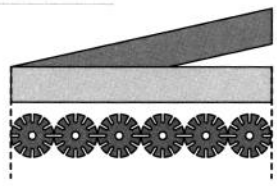

答：和(　　)個花片一樣長

(5)姐姐包了12個肉粽，弟弟包了3個，姐姐比弟弟多包了幾個肉粽？

算式：

答：姐姐多包(　　)個肉粽

7 一個表示1，一條表示10，圈出正確的數量。

(每題3分，共6分)

(1)36

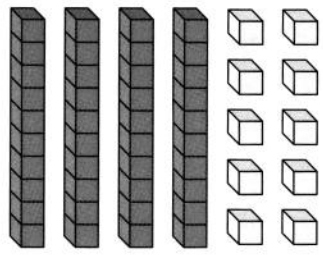

(2)42

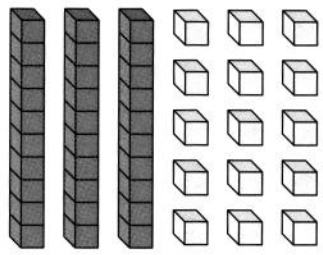

8 移動了哪一塊圖形板？(3分)



移動了(　　)號圖形板

9 素養題。(每個答案3分，共15分)

排隊參觀動畫展覽。



(1)銘傑排在第40個，他的後面有(　　)個人。

(2)俊麟排在第34個，念庭排在第43個，誰會先進場？

(俊麟，念庭)

(3)泰源排在第(　　)個，采玲排在他後面的第4個人，是排在第(　　)個。

(4)會場最多可以容納35個人，50個人可以全部一起進場嗎？(可以，不可以)

有著作權・侵害必究