康軒門市 數學 第13回 (1/2)

一年 班 號 姓名

第 13 回

1下

六、100以內的數

得分

1 先10個、10個圈起來，再數數看。(每格1分，共20分)

(1)



①我圈了(　　)個十和(　　)個一，一共有(　　)顆草莓。

②再加1顆，共有(　　)顆；
再加1顆，共有(　　)顆。

(2)



①我圈了(　　)個十和(　　)個一，一共有(　　)條魚。

②再游來10條，共有(　　)條；
再游來10條，共有(　　)條。

(3)



①我圈了(　　)個十和(　　)個一，一共有(　　)枝筆。

②拿走10枝，剩下(　　)枝；
再拿走1枝，剩下(　　)枝。

(4)



①我圈了(　　)個十和(　　)個一，一共有(　　)顆球。

②拿走1顆，剩下(　　)顆；
再拿走10顆，剩下(　　)顆。

2 按照順序填填看。
(每格1分，共14分)

(1)	10		30	40	50		
(2)	64	65	66				70
(3)	11	21		41		61	71
(4)	95	85	75			45	
(5)	82	81				77	76

3 看圖回答問題。
(每小題1分，共6分)

(1)一束花有10朵。

①

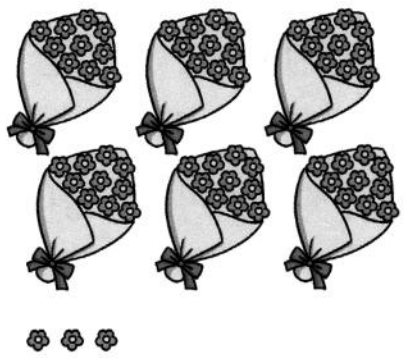

(　　)朵

②

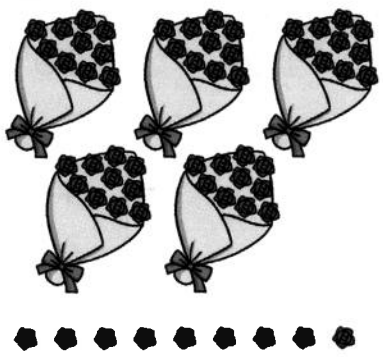

(　　)朵

③哪一種花比較多？
(　　，　　)

(2)一包色紙有10張。

①



(　　)張

②



(　　)張

③哪一種色紙比較多？
(　　，　　)

有著作權・侵害必究

4 有多少？記在定位板上。

(每個答案1分，共16分)

(1)

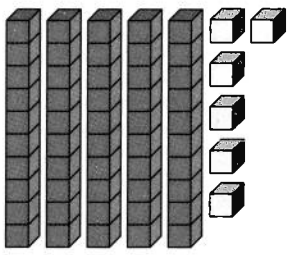

有(　　)個十和(　　)個一，合起來是(　　)。

十位	個位

(2)

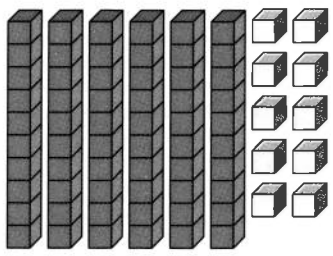

有(　　)個十和(　　)個一，合起來是(　　)。

十位	個位

(3)



有(　　)個十和(　　)個一，合起來是(　　)。

十位	個位

(4)

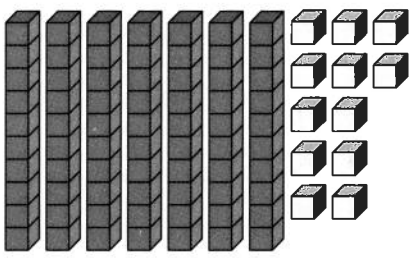

有(　　)個十和(　　)個一，合起來是(　　)。

十位	個位

5 在比較大的數塗上顏色。

(每題2分，共16分)

(1) 59　70

(2) 86　81

(3) 77　84

(4) 64　72

(5) 88　95

(6) 90　69

(7) 76　68

(8) 89　98

6 填填看。(每個答案1分，共16分)

(1)59是(　　)個十和(　　)個一合起來的，記在定位板上。

十位	個位

(2)6個十和12個一合起來是(　　)，記在定位板上。

十位	個位

(3)83的3表示3個(　　)，8表示8個(　　)，記在定位板上。

十位	個位

(4)十位數字是9，且比94小的數有(　　)、(　　)、(　　)和(　　)。

(5)從多到少填入1、2、3、4。

□ 70顆　□ 46顆　□ 95顆　□ 61顆

7 下面都是百數表的一部分，想一想，填填看。

(每個答案1分，共12分)

(1)

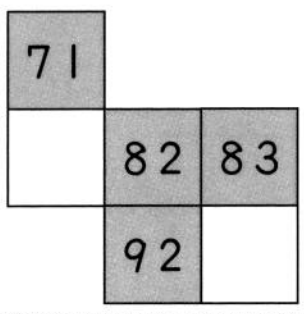

(2)

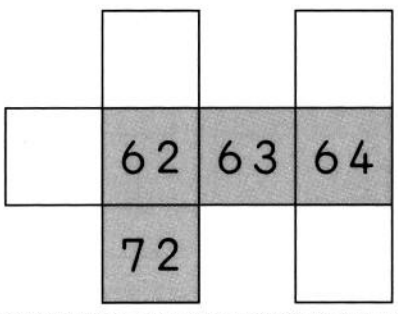

(3)

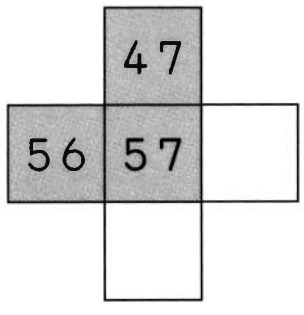

(4)

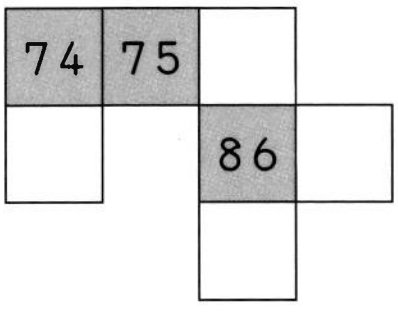

有著作權・侵害必究