康軒門市 數學 第14回 (1/2)

一年　班　號　姓名

得分

第14回 六、100以內的數

1 一包彈珠有10顆，數一數，填填看。(每題1分，共5分)

(1)白色彈珠有(　　)顆。

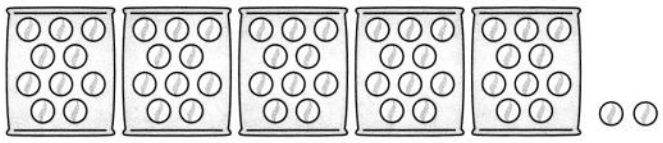

(2)灰色彈珠有(　　)顆。



(3)黑色彈珠有(　　)顆。



(4)哪一種彈珠最多？

(○ ， ◐ ， ●)

(5)哪一種彈珠最少？

(○ ， ◐ ， ●)

2 按照順序填填看。(每格1分，共12分)

(1) 78、79、(　)、(　)、82、83、(　)、85

(2) 63、64、(　)、(　)、67、68、69、(　)

(3) 85、(　)、65、55、(　)、(　)、25、15

(4) 30、40、(　)、60、70、(　)、90、(　)

3 合起來是多少？連連看。(每條連線2分，共10分)

8個十和2個一	90
9個十	28
8個一和2個十	82
9個十和10個一	78
6個十和18個一	100

4 想一想，塗塗看。(第(5)題每小題2分，其餘每題2分，共16分)

(1)哪一個數的5表示5個十？　25　58

(2)哪一個數的1表示1個十？　17　100

(3)哪一個數的8表示8個一？　81　98

(4)哪一個數的6表示6個一？　46　64

(5)比比看，哪一個數比較大？

① 87　78

② 60　90

③ 75　72

④ 58　71

5 數數看，有幾枝蠟筆？再圈出一樣多的積木表示。(每個答案2分，共8分)

(1)

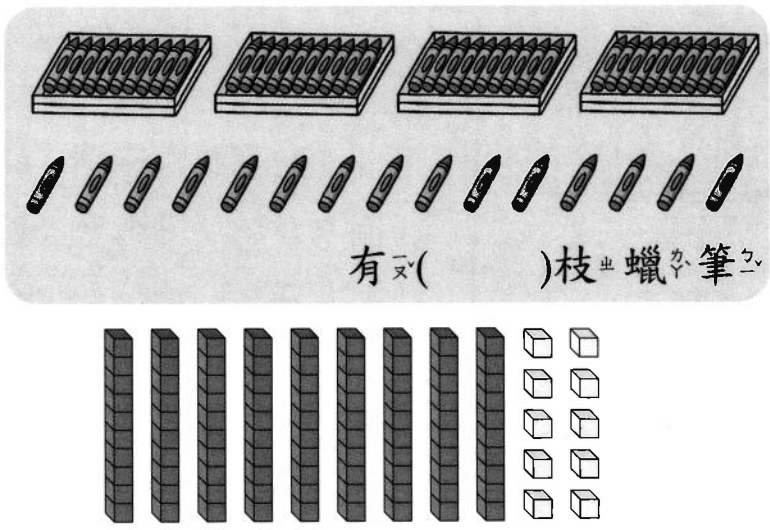

有(　　)枝蠟筆

(2)

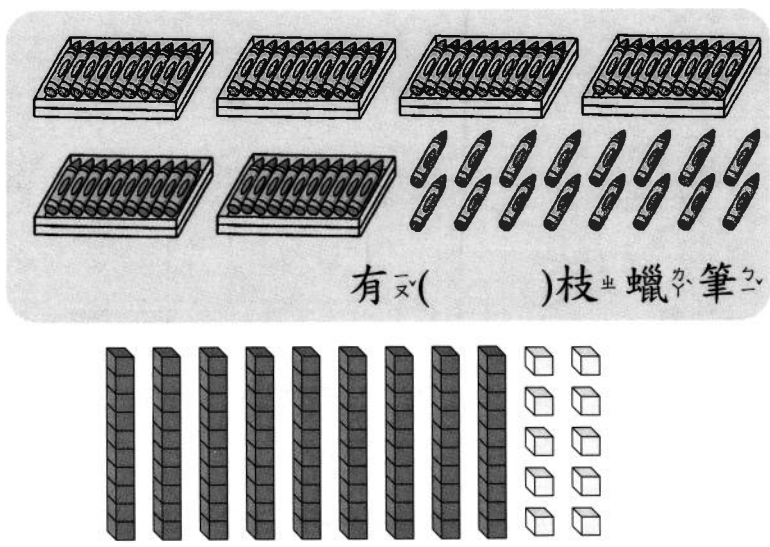

有(　　)枝蠟筆

有著作權・侵害必究

6 一籃有10顆球，看圖填填看。(每格1分，共13分)

(1)



上面有(　　)顆球。

再加1顆，共有(　　)顆球；

再加1顆，共有(　　)顆球。

(2)



上面有(　　)顆球。

再加10顆，共有(　　)顆；

再加1籃，共有(　　)顆。

(3)

上面有(　　)顆球。

拿走1籃，剩下(　　)顆；

再拿走1籃，剩下(　　)顆。

(4)



上面有(　　)顆球。

拿走1顆，剩下(　　)顆；

再拿走1顆，剩下(　　)顆；

再拿走10顆，剩下(　　)顆。

7 先在定位板上記記看，再回答問題。(每題2分，共4分)

(1)家宇和子琪在跳繩。

家宇跳了90下，

子琪跳了84下，

誰跳比較少下？

(家宇，子琪)

十位	個位

(2)羽彤和奇奇搖呼拉圈。



羽彤搖了69圈，

奇奇搖了74圈，

誰搖比較多圈？

(羽彤，奇奇)

十位	個位

8 填填看。(每格2分，共20分)

(1)寫出3個可能的數。

①比67大，且比80小。

②十位數字是8，且比80大。

(2)10顆奇異果裝一盒。

①92顆奇異果最多可以裝成(　　)盒，還剩下(　　)顆。

②92是(　　)個十和(　　)個一。

9 下面都是百數表的一部分，想一想，填填看。

(每個答案1分，共12分)

(1)

22		24	25
32	33		
	43		45
52	53	54	

(2)

		58	59
66	67	68	
76		78	79
	87		89

有著作權・侵害必究