一年 班 號 姓名

第 15 回 一下

七、認識錢幣

得分

1 看圖回答問題。

(每個答案2分，共20分)

(1)ㄅ



(　　)元

(2)ㄆ



(　　)元

(3)ㄇ



(　　)元

(4)ㄈ



(　　)元

(5)ㄉ



(　　)元

(6)ㄊ



(　　)元

(7)哪一個錢包裡的錢最多？

(ㄅ ， ㄆ ， ㄇ ， ㄈ ， ㄉ ， ㄊ)

(8)哪一個錢包裡的錢最少？

(ㄅ ， ㄆ ， ㄇ ， ㄈ ， ㄉ ， ㄊ)

(9)哪兩個錢包裡的錢一樣多？

(ㄅ ， ㄆ ， ㄇ ， ㄈ ， ㄉ ， ㄊ)

2 怎麼付錢才會剛好？用⑩和①畫畫看。(每題4分，共16分)

(1)

35元

(2)

47元

(3)

68元

(4)

24元

3 怎麼付錢才剛好？用⑤⑩、⑤或①畫畫看。

(每題4分，共12分)

79元

(1)用最少的錢幣來付。

(2)只用2種錢幣來付。

(3)剛好用3種錢幣來付。

有著作權・侵害必究

4 把一樣多的錢連起來。

(每條連線2分，共8分)

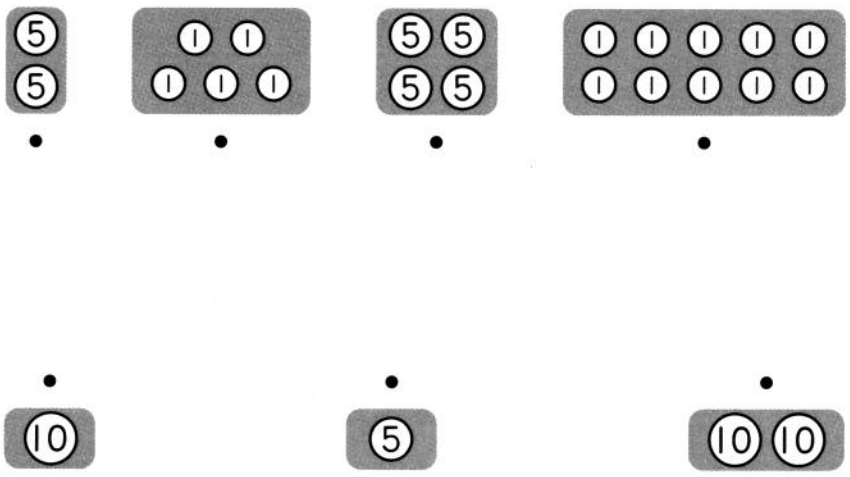

5 填填看。(每小題3分，共12分)

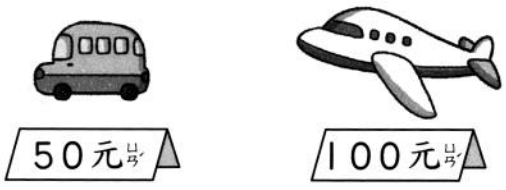

(1)柏亨想買一輛玩具汽車。

①用10來付，要付(　　)個。

②用5來付，要付(　　)個。

(2)晨佑想買一架玩具飛機。

①用50來付，要付(　　)個。

②用10來付，要付(　　)個。

6 用10或1把不夠的錢補畫上去。(每題4分，共12分)

(1) 40元

10 10 10

(2) 75元

10 10 10 10 10

(3) 72元

10 10 10 10

1 1

7 想一想，畫畫看。

(每題5分，共20分)



(1)昀融有7個10，想買甲禮物，最少要拿出幾個10才夠？

最少要拿出(　　)個10才夠

(2)佑嘉有8個10，想買乙禮物，最少要拿出幾個10才夠？

最少要拿出(　　)個10才夠

(3)成勳有9個10，想買丙禮物，最少要拿出幾個10才夠？

最少要拿出(　　)個10才夠

(4)程禾有10個10，想買丁禮物，最少要拿出幾個10才夠？

最少要拿出(　　)個10才夠

有著作權・侵害必究