康軒門市 數學 第17回 (1/2)

一年　　班　　號　姓名

第 17 回　一下

八、二位數的加減

得分

1 算一算，填填看。

(每個答案1分，共10分)

(1)把最裡面的數減掉第二圈的數是多少？填在最外圈。

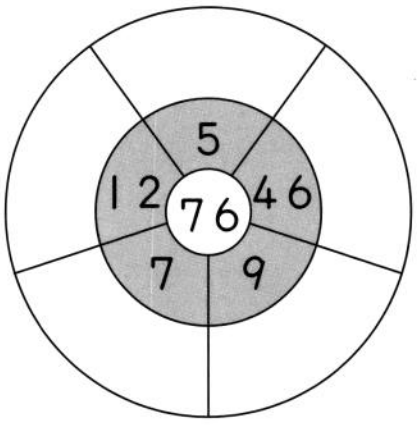

(2)把最裡面的數加上第二圈的數是多少？填在最外圈。

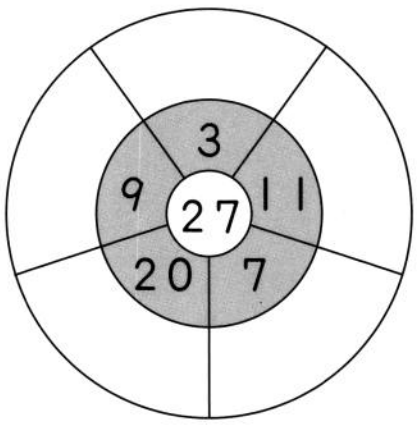

2 算算看。(每題4分，共16分)

(1)8＋55＝(　　)

(2)34＋34＝(　　)

(3)65－7＝(　　)

(4)86－35＝(　　)

3 看圖算算看。(每題6分，共24分)

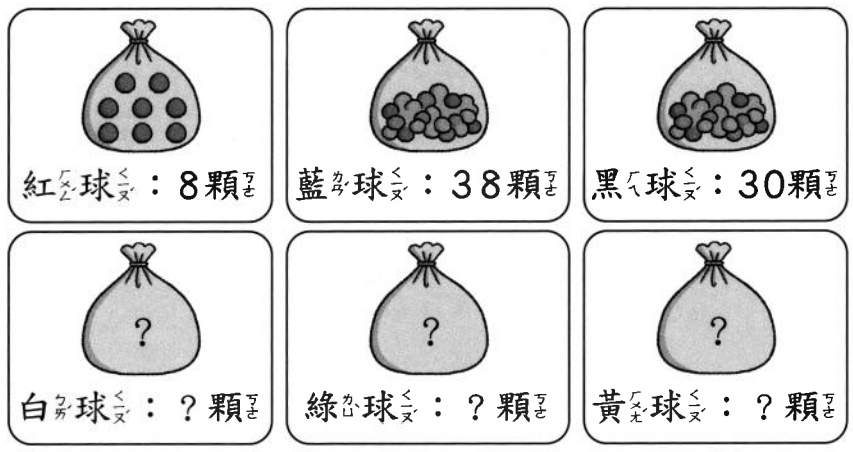

(1)紅球和藍球合起來有幾顆？

算式：

答：(　　)顆

(2)綠球比藍球少了20顆，綠球有幾顆？

算式：

答：(　　)顆

(3)黃球比藍球多了5顆，黃球有幾顆？

算式：

答：(　　)顆

(4)藍球和黑球合起來的數量和白球一樣多，白球有幾顆？

算式：

答：(　　)顆

有著作權・侵害必究

4 寫出做法和答案。

(每題5分，共50分)

(1)夏令營有32個男生和46個女生參加，共有幾個人？

算式：

答：(　　)個人

(2)弟弟有42張球員卡，哥哥又給他16張後，弟弟現在有幾張球員卡？

算式：

答：(　　)張球員卡

(3)丞凱有57元，買了一瓶24元的鮮奶後，還剩下幾元？

算式：

答：剩下(　　)元

(4)柏融讀一本故事書，昨天讀了50頁，今天比昨天多讀13頁，今天讀了幾頁？

算式：

答：(　　)頁

(5)于綸有78元，于庭有36元，于綸比于庭多幾元？

算式：

答：于綸多(　　)元

(6)飲料店上午賣出40杯紅茶和52杯綠茶，一共賣出幾杯茶？

算式：

答：(　　)杯茶

(7)妹妹昨天摺了33顆紙星星，今天又摺了8顆，兩天一共摺了幾顆紙星星？

算式：

答：(　　)顆紙星星

(8)外婆今年69歲，媽媽今年37歲，外婆比媽媽大幾歲？

算式：

答：外婆大(　　)歲

(9)老師有85顆巧克力，送出32個後，還剩下幾顆巧克力？

算式：

答：剩下(　　)顆巧克力

(10)同樂會老師準備了52杯果汁和一些紅茶，紅茶比果汁少6杯，紅茶有幾杯？

算式：

答：紅茶有(　　)杯

有著作權・侵害必究