康軒門市 數學 第20回 (1/2)

一年　　班　　號　姓名

第 20 回　1下

學習成果評量(期末)

得分

1 按照順序填填看。

(每格1分，共6分)

(1) 43 ☐ 63 73 ☐ 93

(2) ☐ 90 80 ☐ 60 50

(3) 70 ☐ 80 85 ☐ 95

2 數一數，填填看。

(每格2分，共24分)

(1)一捆鉛筆有10枝。

甲 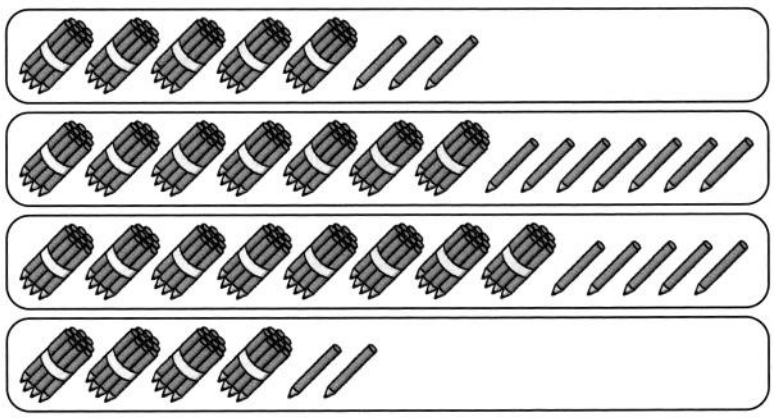

乙

丙

丁

①甲堆鉛筆有(　　)枝。

②乙堆鉛筆有(　　)枝。

③丙堆鉛筆有(　　)枝，

再加10枝，共有(　　)枝。

④丁堆鉛筆有(　　)枝，

拿走10枝，剩下(　　)枝。

(2) A



B



C

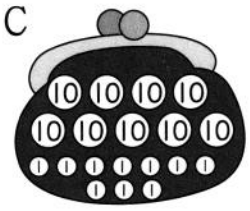

D



① A 錢包裡有(　　)元。

② B 錢包裡有(　　)元。

③ C 錢包裡有(　　)元。

④ D 錢包裡有(　　)元，和(　　)錢包裡的錢一樣多。

⑤ (　　)錢包裡的錢最多。

3 先寫出算式，再畫畫看，並回答問題。(每題3分，共6分)

(1)芊樺有88元，買一包餅乾，會剩下多少元？

42元

算式：

答：剩下(　　)元

(2)若嵐有69元，買一包餅乾，會剩下多少元？



37元

算式：

答：剩下(　　)元

4 在定位板上填填看。

(每題3分，共6分)

(1)8個十和2個一合起來是多少？

十位	個位

(2)7個十和16個一合起來是多少？

十位	個位

5 下面都是百數表的一部分，想一想，填填看。

(每個答案1分，共6分)

(1)

74	
84	
	95

(2)

68	69	
	79	

有著作權・侵害必究

6 寫出做法和答案。

(每題5分，共25分)

(1)老師有19枝紅筆，又買了20枝紅筆，老師共有幾枝紅筆？

算式：

答：(　　)枝紅筆

(2)籃子裡有26顆籃球和9顆排球，籃子裡共有幾顆球？

算式：

答：(　　)顆球

(3)有30個人排隊買甜甜圈，有7個人已經買到了，還有幾個人沒買到？

算式：

答：還有(　　)個人

(4)冰箱裡有37顆奇異果，橘子比奇異果少8顆，橘子有幾顆？

算式：

答：(　　)顆橘子

(5)架子上有65塊蛋糕，賣掉了43塊後，還剩下幾塊蛋糕？

算式：

答：(　　)塊蛋糕

7 先完成月曆，再回答問題。

(每格1分，共19分)

9月						
日	一	二	三	四	五	六
		1	2	3	4	5
6	7			10	11	12
13	14	15	16			19
20	21	22		24	25	26
27	28	29				

(1)9月的第一天是9月(　　)日星期(　　)；9月的最後一天是9月(　　)日星期(　　)。

(2)9月22日是9月的第(　　)個星期(　　)。

(3)9月有(　　)個星期三。

(4)翰陽每個星期四都要上美勞課，9月要上(　　)次美勞課，是哪幾天？

9月(　　)日、(　　)日、(　　)日和(　　)日

(5)亮晴每個星期二和星期五要上體育課，9月有(　　)天要上體育課。

8 素養題。(每題2分，共8分)

幸福社區今年各項活動的舉辦日期，按照先後順序填入1～4。

□(1)10月10日

國慶晚會

□(2)5月10日

登山活動

□(3)12月24日

耶誕嘉年華

□(4)2月12日

元宵搓湯圓

有著作權・侵害必究