一年　　班　　號　姓名

第 21 回　1下

學習成果評量(期末)

得分

1 今天是8月17日，看日曆回答問題。(每個答案1分，共8分)

8月15 星期六	8月16 星期日	8月17 星期一	8月18 星期二	8月19 星期三

(1)詩云的生日是8月19日，那一天是星期(　　)。

(2)明天是佑均的生日，他的生日是(　　)月(　　)日星期(　　)；昨天是建宏的生日，他的生日是(　　)月(　　)日星期(　　)。

(3)今年誰最先過生日？
(詩云，佑均，建宏)

2 看圖算算看。(每題4分，共8分)

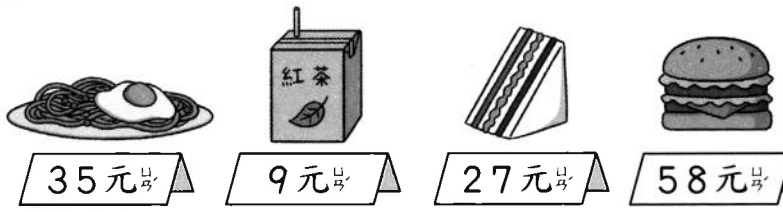

(1)昱凱點了一份鐵板麵和一瓶紅茶，共要付多少元？

算式：

答：(　　)元

(2)一個漢堡比一個三明治多多少元？

算式：

答：漢堡多(　　)元

3 依照數量從多到少填入1～4。(每格2分，共8分)



4 想一想，圈圈看。(每題2分，共6分)

(1)哪一個數的7表示7個十？

57　　75

(2)哪一個數的1表示1個十？

18　　100　　61

(3)哪一個數的9表示9個一？

91　　19

5 畫畫看，再回答問題。
(每題4分，共16分)

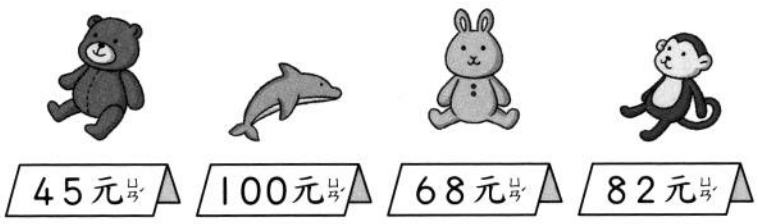

(1)買一隻 ，要怎麼付錢才剛好？用⑩和①畫畫看。

(2)買一隻 ，要怎麼付錢才剛好？用⑩、①畫畫看。

(3)小波有8個⑩，他想買一隻 ，最少要拿出幾個⑩才夠？

最少要拿出(　　)個⑩才夠

(4)冠華買一隻 ，付了8個⑩和1個⑤，要找回幾元？

找回(　　)元

有著作權・侵害必究

6 寫出做法和答案。

(每題5分，共25分)

(1)阿姨包了54顆菜肉水餃和35顆鮮蝦水餃，一共包了幾顆水餃？

算式：

答：(　　)顆水餃

(2)一盒巧克力賣70元，一包糖果比巧克力少30元，一包糖果賣多少元？

算式：

答：(　　)元

(3)老闆買了35杯飲料，分給員工9杯，還剩下幾杯飲料？

算式：

答：(　　)杯飲料

(4)夏令營有27個男生和24個女生報名參加，男生比女生多幾個人？

算式：

答：男生多(　　)個人

(5)值日生整理教室的櫃子，已經整理18個，還有7個櫃子沒有整理，全部有幾個櫃子？

算式：

答：(　　)個櫃子

7 想一想，填填看。

(每格3分，共9分)

(1)比92大，比100小，且個位數字是7的數是(　　)。

(2)比67大，且比70小的數可能是(　　)或(　　)。

8 把一樣多的錢連起來。

(每條連線3分，共9分)



9 素養題。(每個答案1分，共11分)

12月是玲玲最喜歡的月分，因為有她最喜歡的耶誕節，她的生日也在12月呢！

12月						
日	一	二	三	四	五	六
				1	2	3
4	5	6	7	8	9	10
11	12	13	14	15	16	17
18	19	20	21	22	23	24
25	26	27	28	29	30	31

(1)12月一共有(　　)天。

(2)12月週休二日共有(　　)天。

(3)玲玲的生日是12月18日，是12月的第(　　)個星期(　　)。

(4)接第(3)題，如果今天是12月25日耶誕節，玲玲的生日過了嗎？

(過了，還沒過)

(5)媽媽每個星期六都去學插花，12月共有(　　)天要學插花，是哪幾天？

12月(　　)日、(　　)日、(　　)日、(　　)日和(　　)日

有著作權・侵害必究