一年 班 號 姓名

22 學習成果評量(一)

(第一單元～第三單元)

一下

得分

1 先10個、10個圈起來，再數數看。(每題2分，共8分)

(1) 	隻
(2) 	顆
(3) 	枝
(4) 	片

2 把下面的圖形分成兩組，可以怎麼分？(每題6分，共12分)

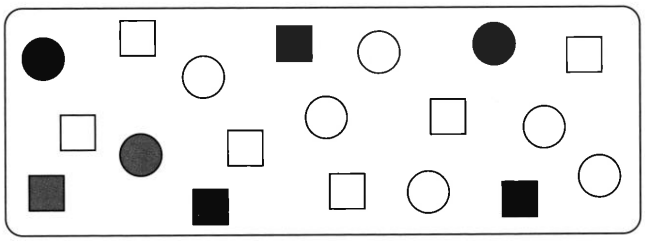

(1)分法1：用(　　)分。

	(　　)個
	(　　)個

(2)分法2：用(　　)分。

	(　　)個
	(　　)個

3 填填看。(每格1分，共10分)

(1)5＋6＝(　　) 5＋7＝(　　) 5＋8＝(　　)	(2)8＋8＝(　　) 7＋8＝(　　) 6＋8＝(　　)
(3)6＋7＝(　　) 7＋6＝(　　)	(4)9＋4＝(　　) 4＋9＝(　　)

4 合起來是多少？用算式記記看。(每題3分，共6分)

(1) 

算式：(　　)＋(　　)＝(　　)

(2)

算式：(　　)＋(　　)＝(　　)

5 看圖回答問題。

(每個答案2分，共12分)

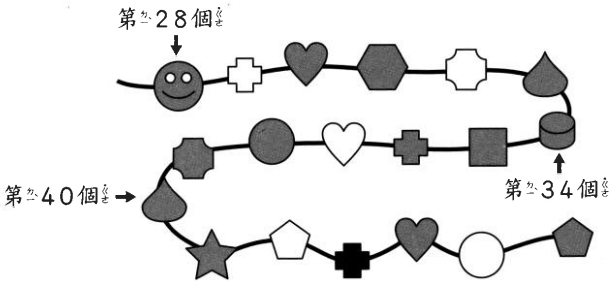

(1)第42個是哪一個圖形？

(　　，　　，　　，　　)

(2)第37個是哪一個圖形？

(　　，　　，　　，　　)

(3)排在第(　　)個，

排在它後面的第5個圖形，

是排在第(　　)個。

(4)★排在第(　　)個，

排在它前面的第3個圖形，

是排在第(　　)個。

有著作權・侵害必究

6 數數看，各是用幾塊 拼成的？(每題3分，共12分)

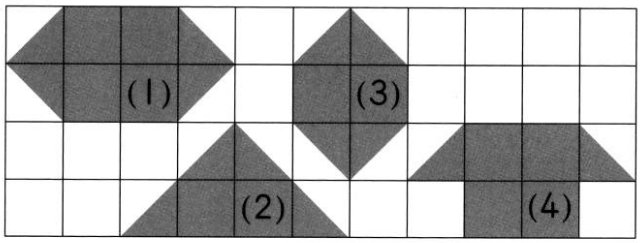

(1) (　　)塊。　(2) (　　)塊。

(3) (　　)塊。　(4) (　　)塊。

7 一個 ▢ 表示1顆糖，一條 ▭▭▭▭▭▭▭▭▭▭ 表示10顆糖，圈出指定的數量。(每題3分，共12分)

(1)30顆糖

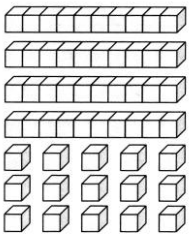

(2)44顆糖

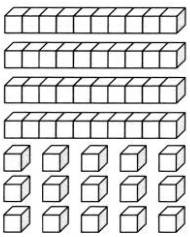

(3)50顆糖

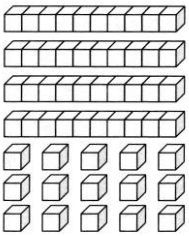

(4)37顆糖

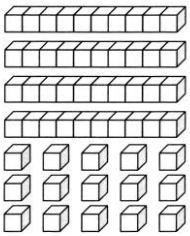

8 移動了哪一塊圖形板？(每題4分，共8分)

(1)



移動了(　　)號圖形板

(2)



移動了(　　)號圖形板

9 寫出做法和答案。(每題4分，共12分)

(1)一盒果凍有8個，媽媽買了2盒，一共有幾個果凍？

算式：

答：(　　)個果凍

(2)水族箱裡有7條魚，又放進6條魚後，現在共有幾條魚？

算式：

答：(　　)條魚

(3)農場裡有5隻公雞和6隻母雞，合起來有幾隻雞？

算式：

答：(　　)隻雞

10 素養題。(每個答案1分，共8分)

爺爺整理花圃，他請佩琪幫忙統計各種花的數量。

	正正一	(　　)朵
	正正	(　　)朵
	正正丅	(　　)朵
	正正一	(　　)朵

(1)花園裡哪一種花最多？

(, , ,)

(2)花園裡哪一種花最少？

(, , ,)

(3)花園裡哪兩種花一樣多？

(, , ,)

有著作權・侵害必究