一年　　班　　號　姓名

1下　22

# 學習成果評量(一)

(第一單元～第三單元)

得分

**1** 先10個、10個圈起來，再數數看。(每題2分，共8分)

| | |
|---|---|
| (1)  | 隻 |
| (2)  | 顆 |
| (3)  | 枝 |
| (4)  | 片 |

**2** 把下面的圖形分成兩組，可以怎麼分？(每題6分，共12分)

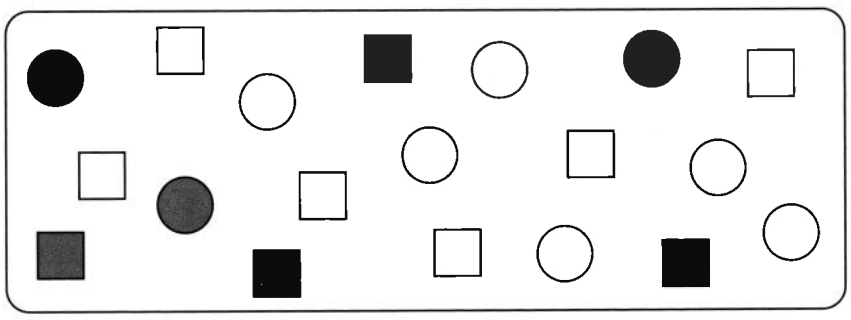

(1)分法1：用(　　)分。

| | |
|---|---|
| | (　　)個 |
| | (　　)個 |

(2)分法2：用(　　)分。

| | |
|---|---|
| | (　　)個 |
| | (　　)個 |

**3** 填填看。(每格1分，共10分)

(1)5＋6＝(　　)
5＋7＝(　　)
5＋8＝(　　)

(2)8＋8＝(　　)
7＋8＝(　　)
6＋8＝(　　)

(3)6＋7＝(　　)
7＋6＝(　　)

(4)9＋4＝(　　)
4＋9＝(　　)

**4** 合起來是多少？用算式記記看。(每題3分，共6分)

(1)

算式：(　　)＋(　　)＝(　　)

(2)

算式：(　　)＋(　　)＝(　　)

**5** 看圖回答問題。
(每個答案2分，共12分)

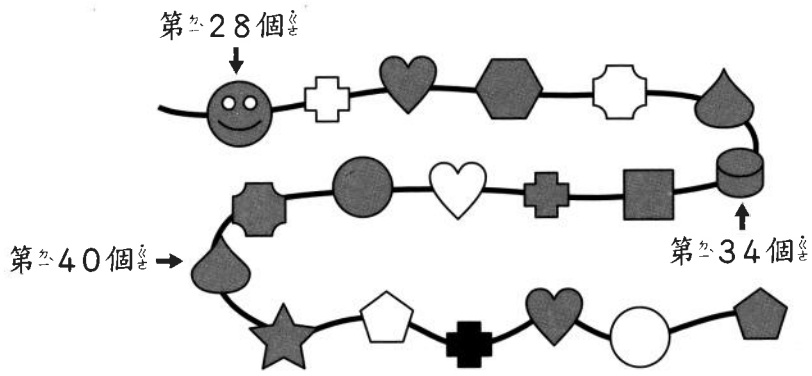


(1)第42個是哪一個圖形？
(　，　，　，　)

(2)第37個是哪一個圖形？
(　，　，　，　)

(3)✚排在第(　　)個，
排在它後面的第5個圖形，
是排在第(　　)個。

(4)★排在第(　　)個，
排在它前面的第3個圖形，
是排在第(　　)個。



有著作權・侵害必究

**6** 數數看，各是用幾塊 拼成的？(每題3分，共12分)

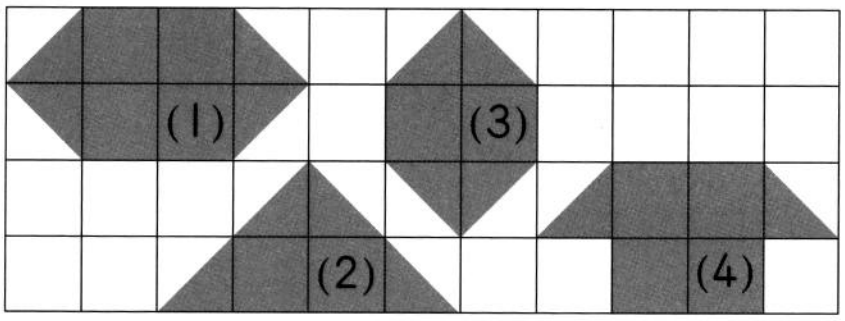


(1) (　　)塊。　(2) (　　)塊。

(3) (　　)塊。　(4) (　　)塊。

**7** 一個  表示1顆糖，一條 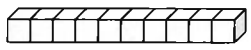 表示10顆糖，圈出指定的數量。(每題3分，共12分)

(1)30顆糖

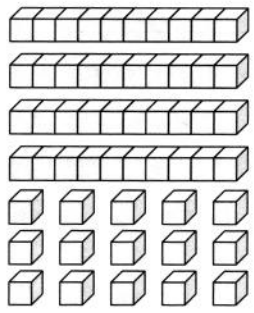

(2)44顆糖

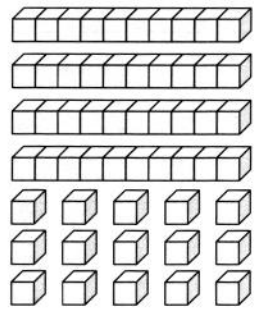

(3)50顆糖

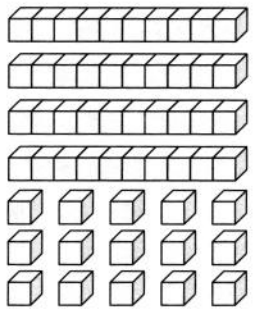

(4)37顆糖

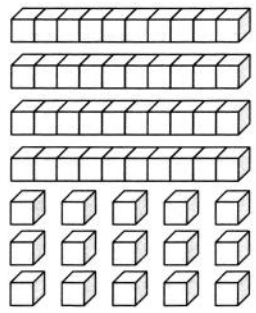

**8** 移動了哪一塊圖形板？

(每題4分，共8分)

(1)




移動了(　　)號圖形板

(2)




移動了(　　)號圖形板

**9** 寫出做法和答案。

(每題4分，共12分)

(1)一盒果凍有8個，媽媽買了2盒，一共有幾個果凍？

算式：

答：(　　)個果凍

(2)水族箱裡有7條魚，又放進6條魚後，現在共有幾條魚？

算式：

答：(　　)條魚

(3)農場裡有5隻公雞和6隻母雞，合起來有幾隻雞？

算式：

答：(　　)隻雞

**10** 素養題。(每個答案1分，共8分)

爺爺整理花圃，他請佩琪幫忙統計各種花的數量。

| | | |
|---|---|---|
| | 正 正 一 | (　　)朵 |
| | 正 正 | (　　)朵 |
| | 正 正 丅 | (　　)朵 |
| | 正 正 一 | (　　)朵 |

(1)花園裡哪一種花最多？

( , , , )

(2)花園裡哪一種花最少？

( , , , )

(3)花園裡哪兩種花一樣多？

( , , , )



有著作權・侵害必究