一年　　班　　號　姓名

1下

23 學習成果評量(二)

(第四單元～第六單元)

得分

1 先10個、10個圈起來，再數數看。(每格1分，共10分)

(1)



①我圈了(　　)個十和(　　)個一，一共有(　　)顆彈珠。

②拿走10顆，剩下(　　)顆；再拿走1顆，剩下(　　)顆。

(2)



①我圈了(　　)個十和(　　)個一，一共有(　　)隻蝴蝶。

②再飛來10隻，共有(　　)隻；再飛來1隻，共有(　　)隻。

2 還剩下多少？用算式記記看。(每題4分，共8分)

(1)

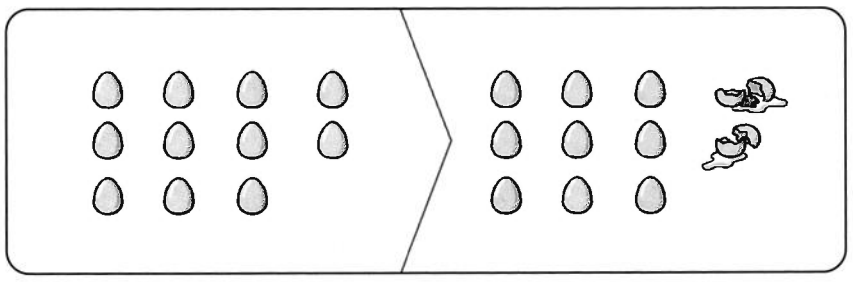

(　　)－(　　)＝(　　)

(2)



(　　)－(　　)＝(　　)

3 從大排到小。(每格1分，共8分)

(1) 79　56　80　65

大(　　)→(　　)→(　　)→(　　)小

(2) 28　82　80　48

大(　　)→(　　)→(　　)→(　　)小

4 看圖填填看。(每格2分，共6分)

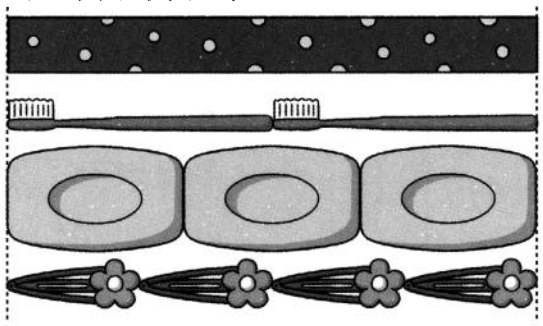

(1)一條彩帶和(　　)個香皂一樣長；也和(　　)個髮夾一樣長。

(2)一枝牙刷和(　　)個髮夾一

5 下面都是百數表的一部分，想一想，填填看。(每個答案1分，共12分)

(1)

	54		
		65	
73		75	
	84		

(2)

77	78	79	
87			90
	98		

6 在□裡打√。(每題2分，共4分)

(1)哪一條緞帶比較長？

□　　□

(2)哪一臺電器比較高？

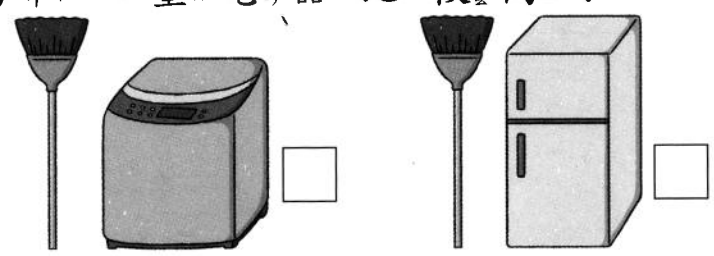

□　　□

有著作權・侵害必究

7 填填看。(每格2分，共12分)

(1) 15－6＝(　　)
15－7＝(　　)
15－8＝(　　)

(2) 18－8＝(　　)
17－8＝(　　)
16－8＝(　　)

8 寫出做法和答案。

(每題5分，共20分)

(1)媽媽煮了14顆水餃，有6顆是姐姐吃的，其他是妹妹吃的，妹妹吃了幾顆水餃？

算式：

答：妹妹吃了(　　)顆水餃

(2)水族箱裡有16條魚，移走了9條，還剩下幾條魚？

算式：

答：剩下(　　)條魚

(3)哥哥有15元，弟弟有9元，哥哥比弟弟多幾元？

算式：

答：哥哥多(　　)元

(4)練習投球，小強投進8球，小信比小強多投進5球，小信投進幾球？

算式：

答：投進(　　)球

9 看圖回答問題。

(每個答案2分，共14分)

(1)

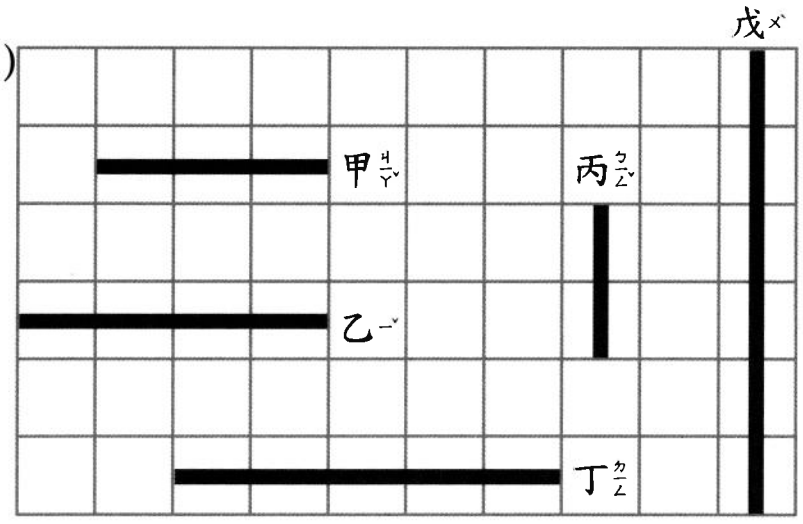

依照長度從長排到短。

(　　)→(　　)→(　　)→(　　)→(　　)

(2)

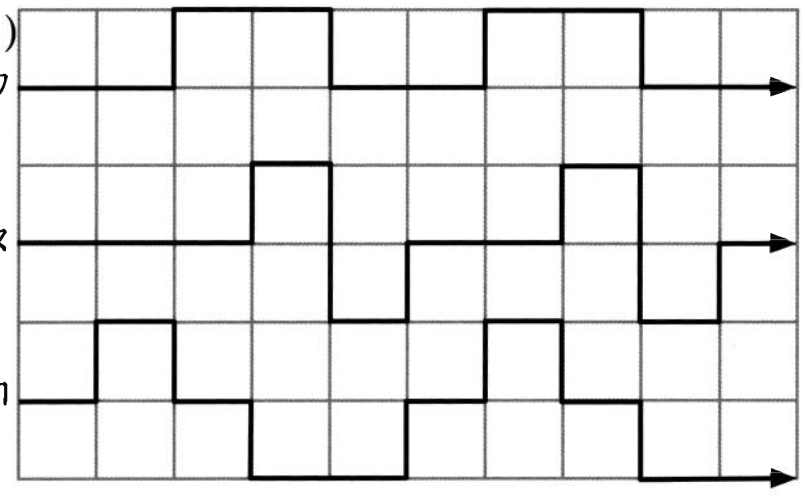

哪一條最長？(ㄅ，ㄆ，ㄇ)

哪一條最短？(ㄅ，ㄆ，ㄇ)

10 素養題。(每題3分，共6分)

奇奇用步長來測量家裡家具的距離。

(1)奇奇先走到冰箱，再走到餐桌，共走了幾步？

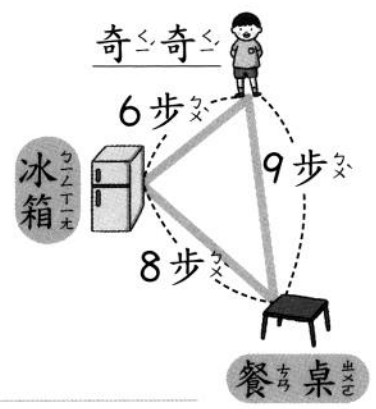

算式：

答：走(　　)步

(2)接第(1)題，如果奇奇直接走到餐桌，會少走幾步？

算式：

答：少走(　　)步

有著作權・侵害必究