_____國小 _____學年度

評量卷　數學領域　一下　範圍：1、20 以內的加法

一　年 _____班 _____號　姓名：_____　得分：_____

一　看圖算算看，合起來有幾個糖果？（每格 3 分，共 27 分）

1.



(　　) + (　　) = (　　)

2.

(　　) + (　　) = (　　)

3.



(　　) + (　　) = (　　)

二　把答案相同的連起來。（每條線 3 分，共 15 分）

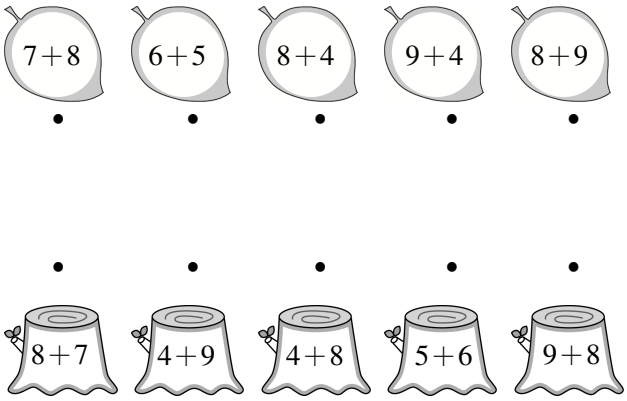

三　加加看。（每題 3 分，共 18 分）

1. 5+6=（　　）
2. 6+6=（　　）
3. 9+7=（　　）
4. 5+9=（　　）
5. 7+4=（　　）
6. 5+8=（　　）

四　圈出正確的答案。（每個 2 分，共 20 分）

1. 答案是 13 的算式。

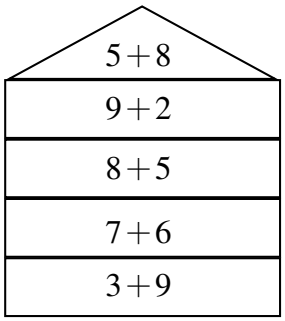

2. 答案是 15 的算式。



五　先想想看，再填填看。（每格 1 分，共 5 分）

1.
5+9=14
6+9=15
7+9=16
8+9=（　　）
9+9=（　　）

2.
7+4=11
7+5=12
7+6=（　　）
7+7=（　　）
7+8=（　　）

六　把做法用算式記下來。（每題 5 分，共 15 分）

1. 蘇文寫書法，上午寫了 8 張練習紙，下午寫了 6 張，蘇文上午和下午共寫幾張練習紙？

算式：

共寫（　　）張

2. 美怡吃了 6 顆葡萄，弟弟吃了 7 顆葡萄，兩個人共吃了幾顆葡萄？

算式：

共吃了（　　）顆葡萄

3. 育軒的書櫃上有 9 個模型玩具，媽媽又給他 2 個，現在書櫃上共有幾個模型玩具？

算式：

共有（　　）個模型玩具