_____國小　_____學年度

評量卷　數學領域　一下　範圍：2、長度

一　年　_____班　_____號　姓名：_____　得分：_____

一　填填看，這些物品有多長？

（每格4分，共16分）

1.

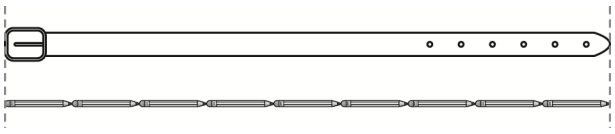

皮帶和（　　）枝一樣長。

2.

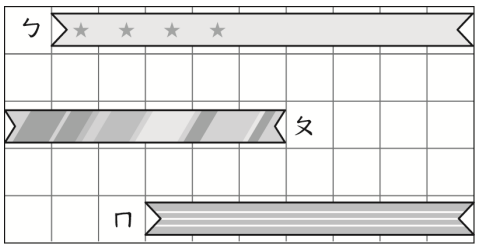

ㄅ緞帶和（　　）個格子一樣長。

ㄆ緞帶和（　　）個格子一樣長。

ㄇ緞帶和（　　）個格子一樣長。

二　哪一個比較長？打∨。

（每題5分，共10分）

1. 哪一個瓶子比較長？

ㄅ

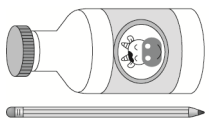

（　　）

ㄆ

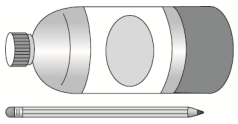

（　　）

2. 哪一條串珠最長？

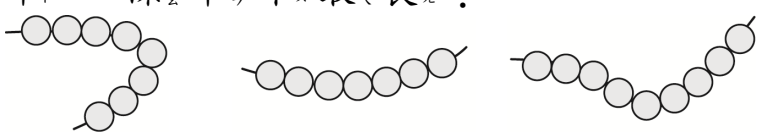

（　　）　（　　）　（　　）

三　看圖回答問題。（每題3分，共12分）

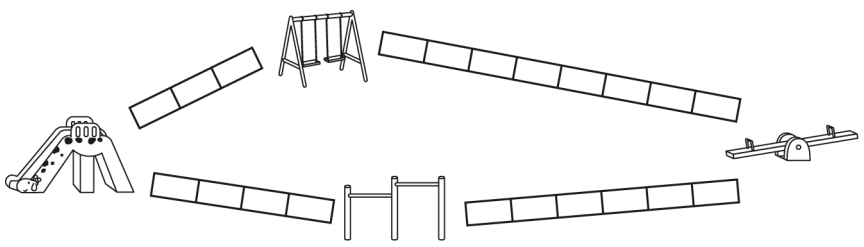

1. 從 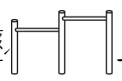 直接走到 ，要走（　　）個□。

2. 從 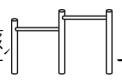 直接走到 ，要走（　　）個□。

3. 從 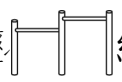 經過  走到 ，共要走（　　）個□。

4. 從 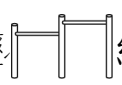 經過 走到 ，共要走（　　）個□。

四　數數看，小朋友走到蘋果樹的路是幾個□長？

（每格4分，共12分）

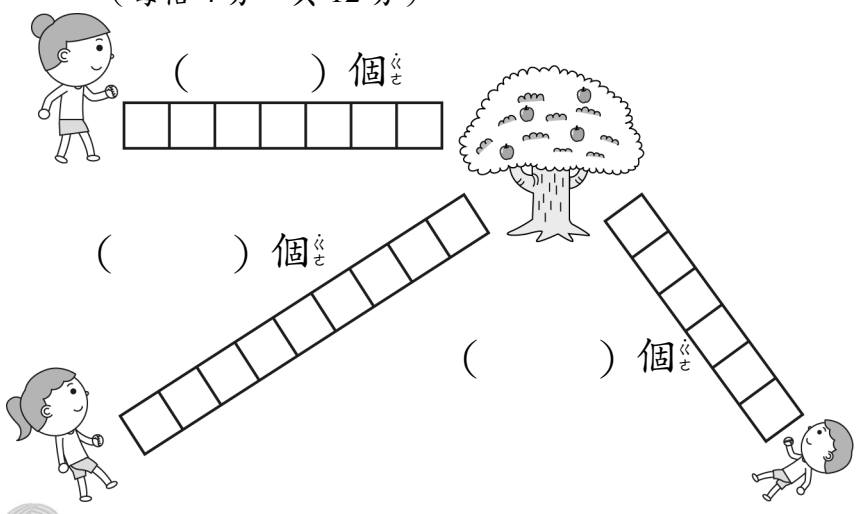

五　看圖填填看、圈圈看。

（每題6分，共30分）

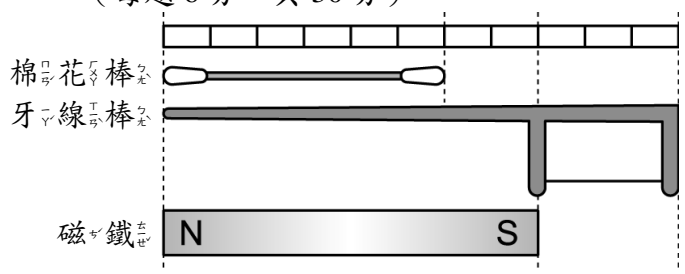

1. 棉花棒和（　　）個□一樣長。
2. 牙線棒和（　　）個□一樣長。
3. 磁鐵和（　　）個□一樣長。
4. （棉花棒、牙線棒、磁鐵）最長。
5. （棉花棒、牙線棒、磁鐵）最短。

六　算算看，有多長？

（每題10分，共20分）

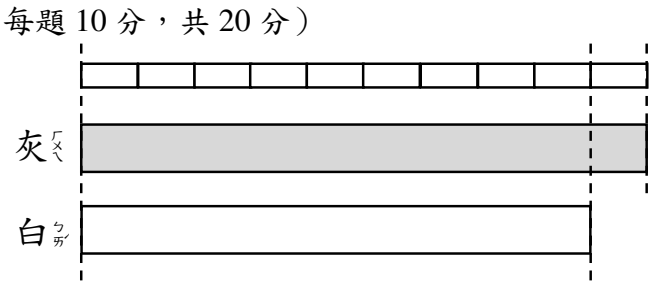

1. 灰緞帶和白緞帶合起來和幾個□一樣長？

算式：

（　　）個

2. 把白緞帶剪下3個□的長度，剩下的白色緞帶和幾個□一樣長？

算式：

（　　）個