_____國小　_____學年度

評量卷　數學領域　一下　範圍：3、20 以內的減法

一　年　_____班　_____號　姓名：_____　得分：_____

一　看圖做做看，再填答案。

（每題 4 分，共 8 分）

1. 

15－6＝（　　）

2. 

11－6＝（　　）

二　算算看。（每題 4 分，共 16 分）

1. 13－4＝（　　）　2. 12－5＝（　　）

3. 16－7＝（　　）　4. 11－9＝（　　）

三　把答案相同的連起來。

（每條線 4 分，共 20 分）

11－4	15－9
16－8	16－9
13－7	15－7
12－9	11－8
15－6	14－5

四　先想想看，再做做看。

（每個答案 4 分，共 24 分）

1. 11－8＝3

12－8＝（　　）

13－8＝（　　）

▲這些算式的哪一個數相同？圈圈看。

被減數

減數

差

2. 14－5＝9

14－6＝（　　）

14－7＝（　　）

▲這些算式的哪一個數相同？圈圈看。

被減數

減數

差

五　把答案是 4 的算式圈起來。

（每個 2 分，共 8 分）



六　畫○算算看，並把算式記下來。

（每題 6 分，共 12 分）

1. 桌上有 12 瓶果汁和 9 瓶豆漿，果汁比豆漿多幾瓶？

果汁

豆漿

算式：

多（　　）瓶

2. 櫃子裡有 13 頂安全帽，7 個小朋友每個人戴 1 頂，還剩下幾頂安全帽？

安全帽

小朋友

算式：

還剩下（　　）頂安全帽

七　寫出算式和答案。

（每題 6 分，共 12 分）

1. 老師買了 14 枝紅筆，用完 6 枝，還有幾枝紅筆？

算式：

還有（　　）枝紅筆

2. 奇奇有 16 顆彈珠，雲安有 9 顆彈珠，奇奇比雲安多幾顆彈珠？

算式：

多（　　）顆彈珠