_____國小 _____學年度

評量卷　數學領域　一下　範圍：4、100 以內的數

一　年 _____班 _____號　姓名：_____　得分：_____

一　數數看，有多少顆棒球？

（每題 2 分，共 8 分）

1.

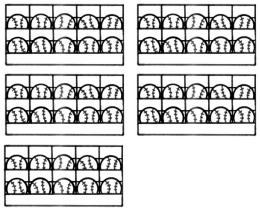

（　　）顆

2.

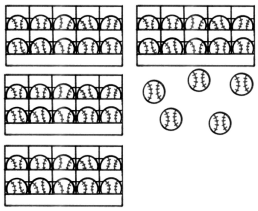

（　　）顆

3.

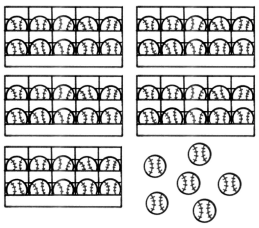

（　　）顆

4.

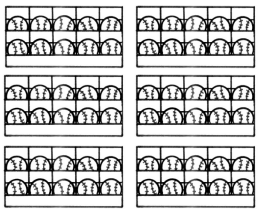

（　　）顆

二　按照數的順序填填看。

（每格 2 分，共 32 分）

1. 88 — 89 — □ — 91 — □ — □
2. 70 — 60 — □ — 40 — □ — □
3. 34 — 44 — □ — □ — □ — □
4. 40 — 45 — 50 — □ — □ — □
5. 64 — 66 — 68 — □ — □ — □

三　填填看。（每格 2 分，共 26 分）

1. 58 的十位數字是（　　），表示有（　　）個十；個位數字是（　　），表示有（　　）個一，記在位值表上。

十位	個位

2. 40 可以分成（　　）個十和 0 個一，記在位值表上。

十位	個位

3. 6 個十和 19 個一，合起來與 7 個十和（　　）個一一樣多，是（　　），記在位值表上。

十位	個位

四　把比較大的數圈起來。

（每題 2 分，共 8 分）

1. 68　63

2. 38　83

3. 51　49

4. 97　89

五　全部的積木和多少個 ▢ 一樣多？記記看。（每格 2 分，共 10 分）

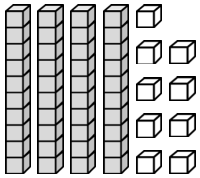

十位	個位

（　　）個十和（　　）個一，合起來是（　　）。

六　10 個巧克力裝一盒，填填看。

（每格 1 分，共 4 分）

1. 96 個巧克力，可以裝滿 9 盒，還剩下（　　）顆。
2. 96 可以分成（　　）個十和 6 個一。
3. 把 96 記在位值表上。

十位	個位

七　將百數表中的空白的部分填上數字。（每格 1 分，共 12 分）

1	2	3	4	5	6	7	8	9	10
11	12					17	18	19	20
21	22	23	24	25	26				
						37	38	39	
41	42	43	44	45		47	48	49	
51	52	53	54	55		57	58	59	
	62	63	64	65		67		69	
	72	73	74	75	76	77		79	
		83				87		89	
91				95	96	97	98	99	100