翰林A　數學　第6單元

_____國小　_____學年度

評量卷　數學領域　一下　範圍：6、數數看有多少元

一　年　_____班　_____號　姓名：_____　得分：_____

一　做做看。（每題5分，共15分）

1. 1張 可以換（　　）個 。

2. 1個 可以換（　　）個 。

3. 1個 可以換（　　）個 。

二　數數看，有多少元？（每題4分，共16分）

1.

（　　）元

2.

（　　）元

3.

（　　）元

4.

（　　）元

三　數數看，有幾元？誰的錢最多？在□裡打✓。（每格4分，共24分）

香雅

（　　）元　□

文芳

（　　）元　□

翔翔

（　　）元　□

四　用⑩表示 ，用①表示 ，畫畫看，要怎麼付錢才會剛好？（每題5分，共10分）

1.



76元

2.



54元

五　小玉和洋洋都想買一個69元的玩具，他們的錢夠不夠買？（每題5分，共10分）

1. 小玉的錢

（夠，不夠）

2. 洋洋的錢



（夠，不夠）

六　素貞想買一個西瓜，但她的錢不夠，還要補多少元才會剛好？用①畫出來。（6分）

48元

素貞的錢

還要補（　　）元

七　一包 賣79元，要怎麼付錢才會剛好？圈圈看。（4分）

八　看圖填填看。（每題5分，共15分）

蛋糕 49元

麵包 18元

咖啡 35元

1. 買一杯咖啡，要付（　　）個 和1個 才會剛好。

2. 買一個麵包，要付1個 和（　　）個 才會剛好。

3. 小丁有4個 ，他的錢不夠買哪一種點心？圈圈看。

（蛋糕、麵包、咖啡）