_____國小 _____學年度

評量卷　數學領域　一下　範圍：8、兩位數的加減法

一　年 _____班 _____號　姓名：_____　得分：_____

一　看圖算算看。（每題 6 分，共 18 分）

1.

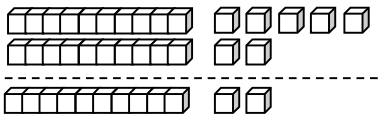

27＋12＝（　　）

2.

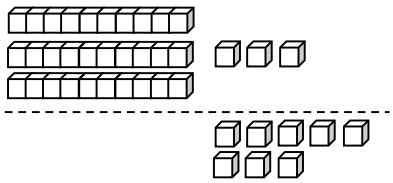

33＋8＝（　　）

3.

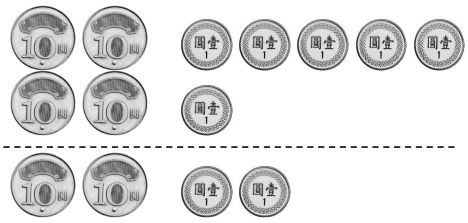

46＋22＝（　　）

二　畫⑩和①算算看。（每題 6 分，共 24 分）

1. 46－2＝（　　）　　2. 25－5＝（　　）

3. 79－28＝（　　）　　4. 70－30＝（　　）

三　寫出算式做做看。（每題 8 分，共 16 分）

1. 一包雲彩紙特價 43 元，文婷買了 2 包，共要付多少元？

算式：

要付（　　）元

2. 學校有 67 把愛心傘，借給小朋友 47 把後，學校還有幾把愛心傘？

算式：

還有（　　）把愛心傘

四　先畫⑩和①，再用算式記下來。（每題 6 分，共 24 分）

1. 圖書館裡原有 54 個人，又進來 9 個人，圖書館裡現在有幾個人？

算式：

有（　　）個人

2. 姐姐有 7 個 10 元錢幣，買一枝 9 元的冰棒，還剩下幾元？

算式：

還剩下（　　）元

3. 一瓶優酪乳 24 元，媽媽買了 2 瓶優酪乳，要付多少元？

算式：

要付（　　）元

4. 倉庫裡有 45 張桌子和 31 張椅子，桌子比椅子多幾張？

算式：

多（　　）張

五　加一加，減一減。（每題 9 分，共 18 分）

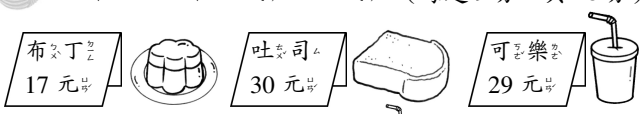

1. 買一塊和一杯，要付多少元？

算式：

要付（　　）元

2. 一杯比一個多多少元？

算式：

多（　　）元