＿＿＿＿國小　＿＿＿＿學年度

評量卷　數學領域　一下　範圍：9、分類整理

一　年　＿＿＿＿班　＿＿＿＿號　姓名：＿＿＿＿＿＿＿＿　得分：＿＿＿＿＿＿

一　數數看，有幾個？（每格 3 分，共 15 分）

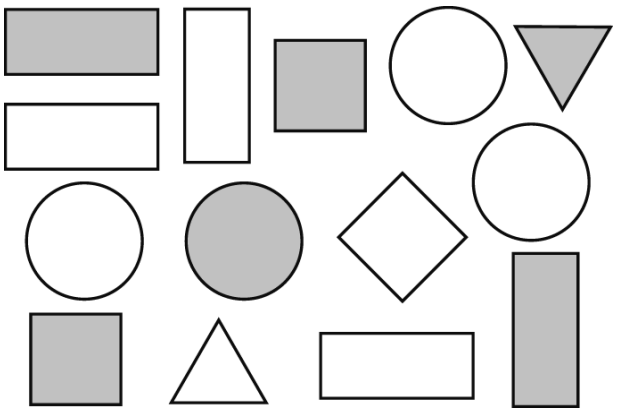

1. 用形狀分分看。

形狀	正方形	長方形	圓形	三角形
數量	3 個	（　　）個	（　　）個	（　　）個

2. 用顏色分分看。

顏色	灰色	白色
數量	（　　）個	（　　）個

二　每數一個圖案就在上面做一個記號，並以「正」字畫記。（每格 3 分，共 30 分）



圖案					
畫記					
數量	（　）個	（　）個	（　）個	（　）個	（　）個

三　三個小朋友玩投球比賽，○表示投中，×表示沒投中。（每個答案 3 分，共 15 分）

秀琴	○	×	○	×	○	×	○	×
家豪	○	○	×	○	○	×	○	○
曉媚	×	○	○	×	○	○	×	○

1. 每個小朋友投中幾次？

秀琴	家豪	曉媚
（　　）次	（　　）次	（　　）次

2. 投中最多次的小朋友是誰？

（秀琴、家豪、曉媚）

3. 投中最少次的小朋友是誰？

（秀琴、家豪、曉媚）

四　一年甲班學生每個人一票，票選出最喜歡的飲料，將結果記錄在下表，再按照紀錄圈一圈，填填看。（每答 4 分，共 40 分）

飲料	養樂多	可樂	果汁	牛奶
票選紀錄	正一	正丅	正	正下
票數	（　　）票	（　　）票	（　　）票	（　　）票

1. 哪一種飲料得最多票？

（ 、 、 、 ）

2. 哪一種飲料得最少票？

（ 、 、 、 ）

3. 喜歡 的有（　　）個人。

4. 喜歡 的有（　　）個人。

5. 喜歡 的有（　　）個人。

6. 一年甲班共有（　　）個人。