_____國小　_____學年度

評量卷　數學領域　一下　範圍：1、20 以內的加法

一　年　_____班　_____號　姓名：_____　得分：_____

一 選出正確的答案。（每題 1 分，共 5 分）

1. (　　)「哥哥有 7 個花片，弟弟有 5 個花片，兩個人共有幾個花片？」，下面哪一個是正確的算式和答案？　① 7－5＝2 ② 7＋5＝12 ③ 7＋4＝11。

2. (　　)下面算式中，哪一個的答案和其他算式的答案不同？　① 8＋6 ② 9＋5 ③ 5＋8 。

3. (　　) 9＋3＝12 的算式中，被加數、加數分別是多少？
① 被加數是 9，加數是 3
② 被加數是 9，加數是 12
③ 被加數是 3，加數是 12。

4. (　　)小明到夜市玩棒球九宮格的遊戲，第一球投中 4 分，第二球投中 9 分，小明一共投中幾分？
① 13 分 ② 14 分 ③ 15 分 。

5. (　　) 9＋9＝18，9＋8＝17，9＋7＝16，想一想，算式 9＋6 的答案是多少？　① 13 ② 15 ③ 16 。

二 把算式連到正確的答案。

（每題 1 分，共 4 分）

① 8＋5 •	• ㄅ 14
② 5＋6 •	• ㄆ 13
③ 7＋7 •	• ㄇ 16
④ 9＋7 •	• ㄈ 11

三 合起來有多少？算算看。

（每格 1 分，共 17 分）

1. 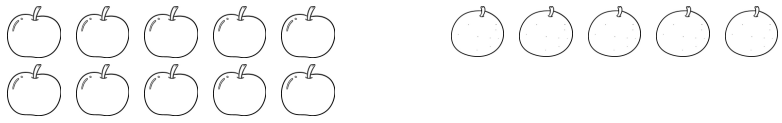

(　　)＋(　　)＝(　　)

有(　　)顆蘋果

2. 

(　　)＋(　　)＝(　　)

有(　　)個甜點

3.

(　　)＋(　　)＝(　　)

有(　　)隻蝴蝶

4.

先數 ，再數 ，

算式記作：4＋(　　)＝(　　)

先數 ，再數 ，

算式記作：7＋(　　)＝(　　)

有(　　)個點心

四 算算看。（每題 1 分，共 6 分）

1. 5＋7＝(　　)　　2. 10＋6＝(　　)

3. 9＋5＝(　　)　　4. 3＋8＝(　　)

5. 7＋6＝(　　)　　6. 5＋6＝(　　)

五 先想一想，再填填看。

（每格 2 分，共 14 分）

1. 4＋8＝12
8＋4＝(　　)

2. 7＋6＝13
6＋7＝(　　)

3. 5＋5＝10
6＋5＝11
7＋5＝(　　)
8＋5＝(　　)

4. 4＋9＝13
4＋8＝(　　)
4＋7＝(　　)
4＋6＝(　　)

六 看圖填出加法算式。

（每格2分，共22分）

1.



8＋8＝16

8＋9＝(　　)

8＋10＝(　　)

2.



(　　)＋(　　)＝(　　)

(　　)＋(　　)＝(　　)

(　　)＋(　　)＝(　　)

七 上下算式答案相同的打✓，不同的打╳。（每題2分，共12分）

1. 6＋9 / 9＋6　(　　)

2. 7＋7 / 8＋6　(　　)

3. 5＋8 / 5＋9　(　　)

4. 8＋8 / 7＋9　(　　)

5. 7＋8 / 10＋9　(　　)

6. 6＋7 / 2＋9　(　　)

八 把做法用算式記下來。

（每題2分，共12分）

1. 桌上有4個草莓蛋糕和7個巧克力蛋糕，共有幾個蛋糕？

算式：

共有(　　)個蛋糕

2. 教室黑板上貼著6個圓形磁鐵和8個長方形磁鐵，共有幾個磁鐵？

算式：

共有(　　)個磁鐵

3. 王醫生的寵物醫院裡有8隻小狗和4隻小貓，醫院裡共有幾隻動物？

算式：

共有(　　)隻動物

4. 動物園裡原有8隻無尾熊，後來又引進5隻無尾熊，現在全部共有幾隻無尾熊？

算式：

共有(　　)隻無尾熊

5. 池塘裡有7隻鴨子，又游來了5隻，現在池塘裡有幾隻鴨子？

算式：

共有(　　)隻鴨子

6. 婉玉昨天蒐集8張微笑貼紙，今天又蒐集7張微笑貼紙，她一共蒐集了幾張微笑貼紙？

算式：

一共蒐集了(　　)張

九 挑戰題。（每格1分，共8分）

▲選出正確答案並打✓。

7＋9	7＋8	7＋7	7＋6
3＋9	4＋9	5＋9	6＋9

(1) 比 7＋9 答案少1的是 6＋9 和

(　　) 7＋8　(　　) 7＋6

(2) 和 7＋7 答案相同的是

(　　) 6＋9　(　　) 5＋9

(3) 比 3＋9 答案多1的是

(　　) 4＋9　(　　) 5＋9

(　　) 7＋8　(　　) 7＋6

(有2個答案)