_____國小　_____學年度

評量卷　數學領域　一下　範圍：2、長度

一　年　_____班　_____號　姓名：_____　得分：_____

一　勾選題。（每格 1 分，共 10 分）

1. 哪一邊比較長？在（　）裡打✓。

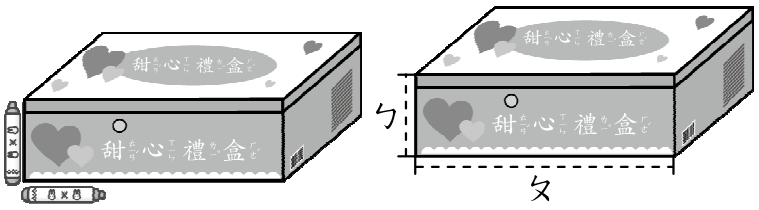

ㄅ（　　）　　ㄆ（　　）

2. 哪一邊比較短？在（　）裡打✓。

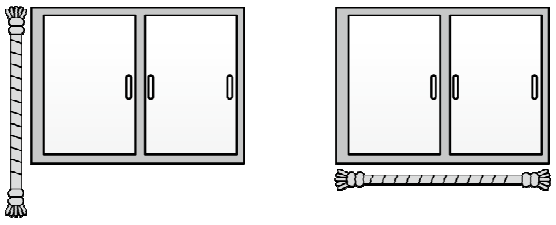

ㄅ（　　）

ㄆ（　　）

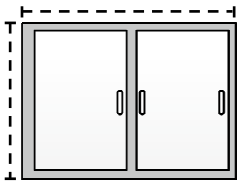

3. 正確的在（　）裡打✓。

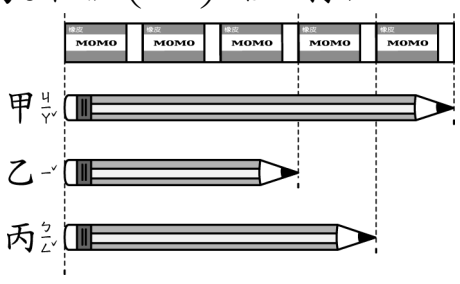

（1）（　　）甲鉛筆比丙鉛筆長。

（2）（　　）乙鉛筆比丙鉛筆短。

（3）（　　）甲鉛筆比乙鉛筆短。

4. 哥哥和弟弟每天走路上學，上學走ㄅ路線，放學回家走ㄆ路線，從學校到家裡，哪一條路線比較短？在（　）裡打✓。

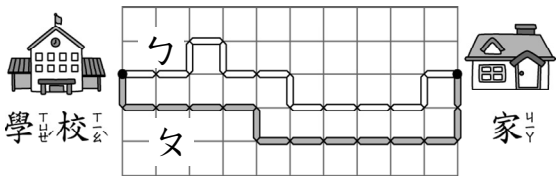

ㄅ（　　）　ㄆ（　　）　一樣短（　　）

二　看圖做做看。（每答 2 分，共 46 分）

1. 繩子打開後和（　　）個木條一樣長。

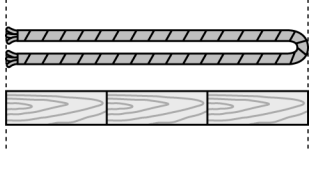

2. 一棵聖誕樹大約和（　　）個禮物盒一樣高。



3.

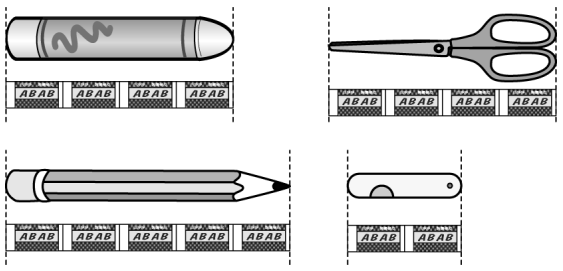

（1）一枝 和（　　）塊 一樣長。

（2）一把 和（　　）塊 一樣長。

（3）一枝 和一把 接起來和（　　）塊 一樣長。

（4）一把 和（　　）把 一樣長。

4.

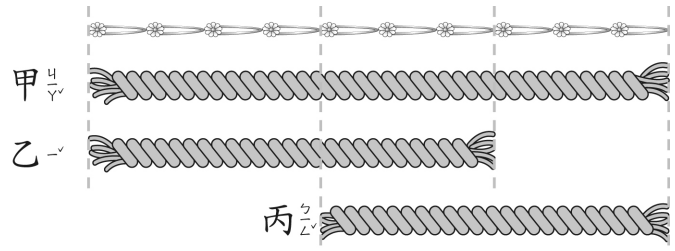

（1）甲繩子和（　　）個髮夾一樣長。

（2）乙繩子和（　　）個髮夾一樣長。

（3）丙繩子和（　　）個髮夾一樣長。

（4）甲繩子剪去 6 個髮夾的長度後，剩下的繩子和（　　）個髮夾一樣長。

5. 先數一數，再圈圈看。

丹丹　 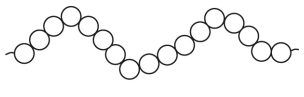 　（　　）個

皮皮　 　（　　）個

多多　 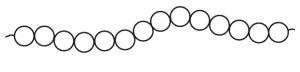 　（　　）個

（丹丹，皮皮，多多）的手鍊拉直後最長。

6.

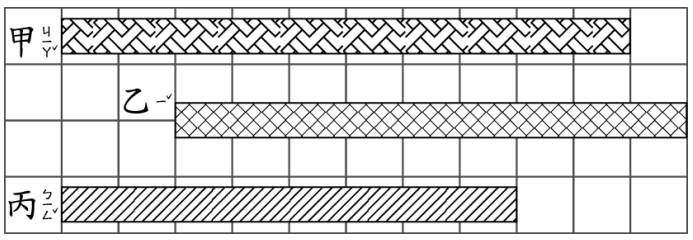

(1) 甲緞帶有（　　）格長，乙緞帶有（　　）格長，丙緞帶有（　　）格長。

(2) 最長的緞帶比最短的緞帶多了（　　）格長。

7. 數一數，小動物回家需要經過幾個地磚？先填填看，再把距離家最短的圈起來。

（　　）個地磚

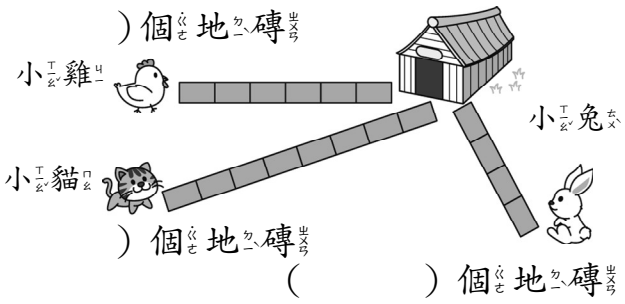

（　　）個地磚

（　　）個地磚

距離家最短的是

（小雞，小貓，小兔）

8. 自動鉛筆比水彩筆少（　　）支髮夾長。

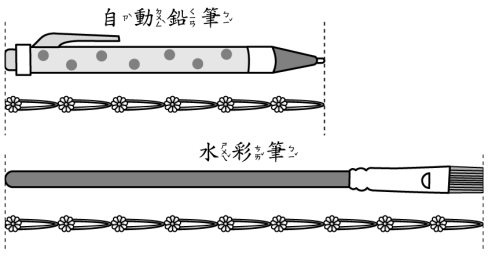

三 看圖算算看，要走幾塊磁磚？

（每答2分，共8分）

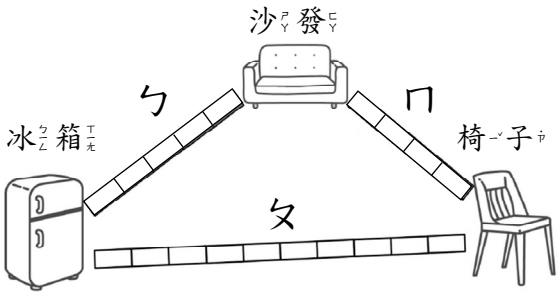

1. 從冰箱走ㄅ路線到沙發，要走（　　）塊磁磚。
2. 從椅子走ㄇ路線到沙發，要走（　　）塊磁磚。
3. 從冰箱走ㄆ路線到椅子，再走ㄇ路線到沙發，要走幾塊磁磚？

算式：

要走（　　）塊磁磚

四 看圖寫出算式做做看。

（每答4分，共24分）

1. 美工刀和橡皮擦合起來和幾支大頭針一樣長？

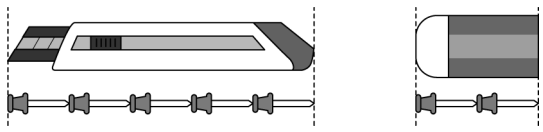

算式：

和（　　）支大頭針一樣長

2. 一條繩子和6枝鉛筆一樣長，把這條繩子剪掉3枝鉛筆的長度，會和幾枝鉛筆一樣長？

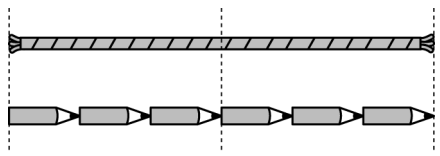

算式：

和（　　）枝鉛筆一樣長

3. 把 剪掉一段和 一樣長的長度，剩下的和幾個 一樣長？

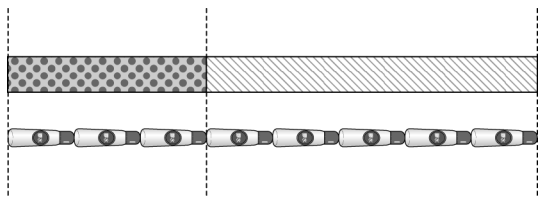

算式：

和（　　）個 一樣長

五 挑戰題。（每題4分，共12分）

▲「噹！噹！噹！」放學的鐘聲響起了，小朋友們準備回家。小丸子今天自己要走回家，她記得有3條路線可以回家。

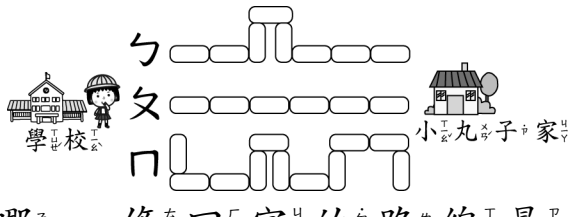

(1) 哪一條回家的路線最長？（ㄅ，ㄆ，ㄇ）

(2) 哪一條回家的路線最短？（ㄅ，ㄆ，ㄇ）

(3) 小丸子想早點回家看卡通，要選哪一條路線，才可以最快回家？（　　）（填入代號）