_____國小　_____學年度

**評量卷　數學領域　一下　範圍：3、20以內的減法**

**一　年　_____班　_____號　姓名：_____　得分：_____**

## 一　選出正確的答案。（每題3分，共9分）

1. （　　）「一盒鳳梨酥有12塊，弟弟吃掉了7塊，還剩下幾塊？」哪一個是正確的算式？　① 12＋7＝19　② 12－7＝5　③ 12－5＝7。

2. （　　）算式14－5＝9中，9稱為　① 被減數　② 減數　③ 差。

3. （　　）小美和小麗比賽編花環，小美編了8個，小麗編了13個，小美比小麗少編幾個？　① 5個　② 6個　③ 7個。

## 二　看圖填填看。（每格1分，共11分）

1. 還剩下多少顆蘋果？



18－9＝（　　）

剩下（　　）顆蘋果

2. 還剩下多少顆草莓？

（1）



17－7＝（　　）

剩下（　　）顆草莓

（2）



16－（　　）＝（　　）

剩下（　　）顆草莓

3. 甜甜圈比漢堡多幾個？



15－7＝（　　）　　多（　　）個

4. 一個蛋糕配一瓶果汁，蛋糕不夠幾個？

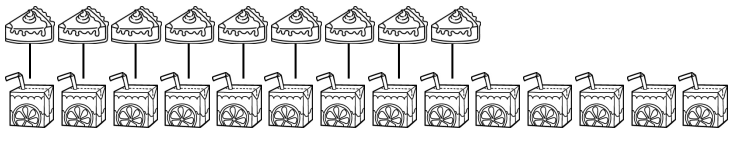

14－9＝（　　）　　不夠（　　）個

## 三　算算看。（每題2分，共12分）

1. 16－8＝（　　）　2. 14－5＝（　　）

3. 12－8＝（　　）　4. 13－6＝（　　）

5. 15－4＝（　　）　6. 15－9＝（　　）

## 四　先想一想，再填填看。（每答1分，共20分）

1.
13－4＝9
12－4＝8
11－4＝（　　）
10－4＝（　　）
9－4＝（　　）

2.
13－6＝7
14－6＝8
15－6＝（　　）
16－6＝（　　）
17－6＝（　　）

3.
14－5＝9
14－6＝8
14－7＝（　　）
14－8＝（　　）
14－9＝（　　）

4.
18－8＝10
18－7＝11
18－6＝（　　）
18－5＝（　　）
18－4＝（　　）

5. 找出正確的算式並填入代號，觀察這些算式的哪一個數相同。

| | | |
|---|---|---|
| ㄅ 17－9 | ㄆ 11－6 | ㄇ 16－9 |
| ㄈ 12－7 | ㄉ 18－9 | ㄊ 10－5 |

（1）（　　）＝9
（　　）＝8
（　　）＝7
這些算式的哪一個數相同？圈圈看。
（被減數，減數，差）

（2）（　　）＝5
（　　）＝5
（　　）＝5
這些算式的哪一個數相同？圈圈看。
（被減數，減數，差）

## 五 琪琦、津金、竇竇和莎莎一起蒐集彩色彈珠。圈一圈，做做看。（每答2分，共18分）

▲ 琪琦有9顆彩色彈珠，津金有13顆彩色彈珠，竇竇有15顆彩色彈珠，莎莎有14顆彩色彈珠。

(1)琪琦和津金的彈珠誰比較多？多幾顆？

算式：

（琪琦，津金）的彈珠比較多，多（　　）顆

(2)津金和竇竇的彈珠誰比較少？少幾顆？

算式：

（津金，竇竇）的彈珠比較少，少（　　）顆

(3)琪琦和莎莎的彈珠誰比較少？少幾顆？

算式：

（琪琦，莎莎）的彈珠比較少，少（　　）顆

## 六 把做法用算式記下來。（每題3分，共24分）

1. 奇奇班上有14個男生和8個女生，男生比女生多幾個人？

算式：

多（　　）個人

2. 公車上原有15個乘客，有7個人下車後，還剩下幾個乘客？

算式：

還剩下（　　）個乘客

3. 盤子上有4個甜甜圈和13個紅豆餅，甜甜圈比紅豆餅少幾個？

算式：

少（　　）個

4. 老師把8顆球發給16個同學，每個人要拿一顆，球不夠幾顆？

算式：

不夠（　　）顆球

5. 健怡有11張貼紙，嘉銘有9張貼紙，兩人的貼紙相差幾張？

算式：

相差（　　）張

6. 妞妞昨天做17題數學練習題，今天做了9題，昨天比今天多做了幾題？

算式：

多做了（　　）題

7. 小梅做了12顆梅子果凍，一共吃了3顆，還剩下幾顆？

算式：

還剩下（　　）顆

8. 高鐵接駁車上原有16個乘客，到站時有4個乘客下車，車上還剩下幾個乘客？

算式：

還剩下（　　）個乘客

## 七 挑戰題。（每個1分，共6分）

▲ 選出正確答案並圈起來。（答案不只1個）

| | | | |
|---|---|---|---|
| 18－9 | 18－8 | 18－7 | 18－6 |
| 17－9 | 17－8 | 17－7 | 17－6 |
| 16－9 | 16－8 | 16－7 | 16－6 |

(1)和 16－6 答案相同的有

（17－7，18－8，18－9）

(2)比 17－9 答案多1的有

（18－9，16－8，17－8）