_____國小　_____學年度

評量卷　數學領域　一下　範圍：3、20 以內的減法

一　年　_____班　_____號　姓名：_____　得分：_____

一 選出正確的答案。（每題 3 分，共 9 分）

1. (　　) 「一盒鳳梨酥有 12 塊，弟弟吃掉了 7 塊，還剩下幾塊？」哪一個是正確的算式？　① 12＋7＝19　② 12－7＝5　③ 12－5＝7。

2. (　　) 算式 14－5＝9 中，9 稱為　① 被減數　② 減數　③ 差。

3. (　　) 小美和小麗比賽編花環，小美編了 8 個，小麗編了 13 個，小美比小麗少編幾個？　① 5 個　② 6 個　③ 7 個。

二 看圖填填看。（每格 1 分，共 11 分）

1. 還剩下多少顆蘋果？



18－9＝(　　)

剩下(　　)顆蘋果

2. 還剩下多少顆草莓？

(1)

17－7＝(　　)

剩下(　　)顆草莓

(2)

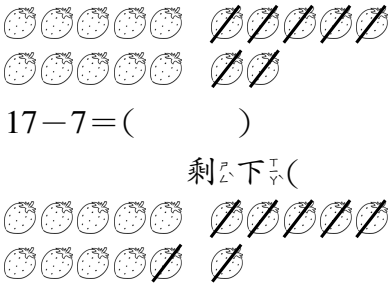

16－(　　)＝(　　)

剩下(　　)顆草莓

3. 甜甜圈比漢堡多幾個？



15－7＝(　　)　　多(　　)個

4. 一個蛋糕配一瓶果汁，蛋糕不夠幾個？

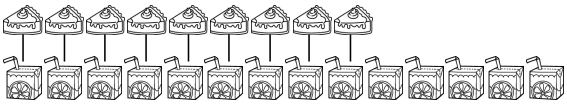

14－9＝(　　)　　不夠(　　)個

三 算算看。（每題 2 分，共 12 分）

1. 16－8＝(　　)　　2. 14－5＝(　　)

3. 12－8＝(　　)　　4. 13－6＝(　　)

5. 15－4＝(　　)　　6. 15－9＝(　　)

四 先想一想，再填填看。（每答 1 分，共 20 分）

1.
13－4＝9
12－4＝8
11－4＝(　　)
10－4＝(　　)
9－4＝(　　)

2.
13－6＝7
14－6＝8
15－6＝(　　)
16－6＝(　　)
17－6＝(　　)

3.
14－5＝9
14－6＝8
14－7＝(　　)
14－8＝(　　)
14－9＝(　　)

4.
18－8＝10
18－7＝11
18－6＝(　　)
18－5＝(　　)
18－4＝(　　)

5. 找出正確的算式並填入代號，觀察這些算式的哪一個數相同。

ㄅ 17－9	ㄆ 11－6	ㄇ 16－9
ㄈ 12－7	ㄉ 18－9	ㄊ 10－5

(1) (　　)＝9
(　　)＝8
(　　)＝7
這些算式的哪一個數相同？圈圈看。
（被減數，減數，差）

(2) (　　)＝5
(　　)＝5
(　　)＝5
這些算式的哪一個數相同？圈圈看。
（被減數，減數，差）

五

琪琦、津金、竇竇和莎莎一起蒐集彩色彈珠。圈一圈，做做看。（每答 2 分，共18 分）

▲ 琪琦有 9 顆彩色彈珠，津金有 13 顆彩色彈珠，竇竇有 15 顆彩色彈珠，莎莎有 14 顆彩色彈珠。

(1)琪琦和津金的彈珠誰比較多？多幾顆？

算式：

（琪琦，津金）的彈珠比較多，多（　　）顆

(2)津金和竇竇的彈珠誰比較少？少幾顆？

算式：

（津金，竇竇）的彈珠比較少，少（　　）顆

(3)琪琦和莎莎的彈珠誰比較少？少幾顆？

算式：

（琪琦，莎莎）的彈珠比較少，少（　　）顆

六

把做法用算式記下來。

（每題 3 分，共 24 分）

1. 奇奇班上有 14 個男生和 8 個女生，男生比女生多幾個人？

算式：

多（　　）個人

2. 公車上原有 15 個乘客，有 7 個人下車後，還剩下幾個乘客？

算式：

還剩下（　　）個乘客

3. 盤子上有 4 個甜甜圈和 13 個紅豆餅，甜甜圈比紅豆餅少幾個？

算式：

少（　　）個

4. 老師把 8 顆球發給 16 個同學，每個人要拿一顆，球不夠幾顆？

算式：

不夠（　　）顆球

5. 健怡有 11 張貼紙，嘉銘有 9 張貼紙，兩人的貼紙相差幾張？

算式：

相差（　　）張

6. 妞妞昨天做 17 題數學練習題，今天做了 9 題，昨天比今天多做了幾題？

算式：

多做了（　　）題

7. 小梅做了 12 顆梅子果凍，一共吃了 3 顆，還剩下幾顆？

算式：

還剩下（　　）顆

8. 高鐵接駁車上原有 16 個乘客，到站時有 4 個乘客下車，車上還剩下幾個乘客？

算式：

還剩下（　　）個乘客

七

挑戰題。（每個 1 分，共 6 分）

▲選出正確答案並圈起來。

（答案不只 1 個）

18－9	18－8	18－7	18－6
17－9	17－8	17－7	17－6
16－9	16－8	16－7	16－6

(1)和 16－6 答案相同的有

（17－7，18－8，18－9）

(2)比 17－9 答案多 1 的有

（18－9，16－8，17－8）