_____國小　_____學年度

評量卷　數學領域　一下　範圍：4、100 以內的數

一　年　_____班　_____號　姓名：_____　得分：_____

一　看圖填填看。（每格 1 分，共 8 分）

1.

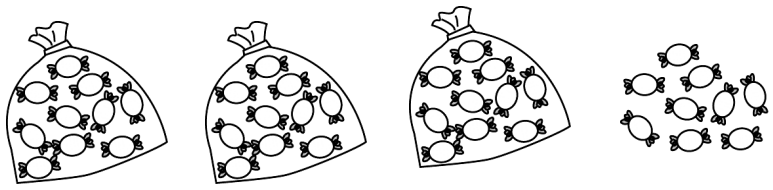

共有（　　）顆糖果，

再多 1 顆，共（　　）顆糖果；

再多 10 顆，共（　　）顆糖果。

2.

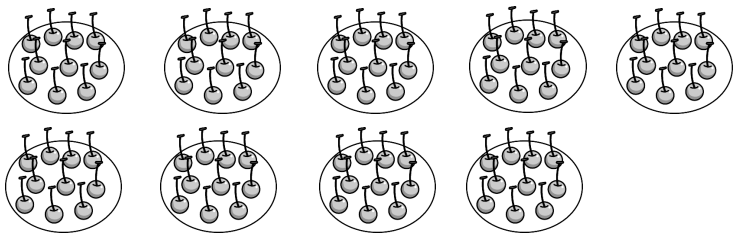

共有（　　）顆櫻桃，

拿走 10 顆，剩（　　）顆櫻桃；

再拿走 1 顆，剩（　　）顆櫻桃。

3. 橘子一袋 5 顆。



有（　　）顆橘子

4. 棒棒糖一組 2 枝。



有（　　）枝棒棒糖

二　按照數的順序填填看。（每格 1 分，共 17 分）

1. 47 — □ — 49 — □ — □ — 52 — 53

2. 40 — 50 — □ — □ — 80 — 90 — □

3. □ — 57 — 47 — □ — □ — 17 — 7

4. □ — 72 — 74 — 76 — □ — □ — □

5. □ — 35 — 40 — □ — □ — 55 — □

三　先把 10 個、10 個圈起來，再數數看，有多少。（每答 1 分，共 4 分）

1.

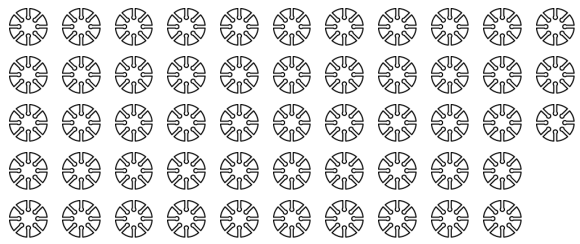

有（　　）個花片

2.



有（　　）顆軟糖

四　做做看。（每答 1 分，共 14 分）

1. 先在（　）裡寫出積木表示的數，再將比較大的數在□裡打✓。

（1）

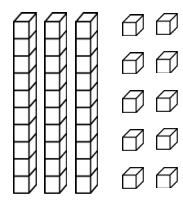

（　　）

（2）

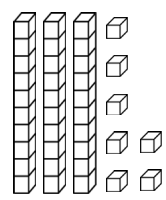

（　　）

2. 把比較大的數圈起來。

（1）



（2）



3. 把比 65 小的數圈起來。

（ 46 ， 59 ， 71 ， 38 ， 82 ）

4. 把比 50 大的數圈起來。

（ 34 ， 68 ， 94 ， 27 ， 45 ）

5. 觀察右邊的圖，圈一圈再填填看。

上

62	63	64	65
72	73	74	75
82	83	84	85
92	93	94	95

左　右　下

（1）從 62 開始往下數，下面的數比上面的數（增加，減少）（　　）。

（2）從 62 開始往右數，右邊的數比左邊的數（增加，減少）（　　）。

五 先將數字記在位值表上，再回答問題。（每答1分，共10分）

1. 小圓摺了47個星星，小圖摺了40個星星，誰摺的星星比較少？

小圓

十位	個位

小圖

十位	個位

（小圓，小圖）摺的星星比較少。

2. 小威和小茹採草莓，小威採了63顆草莓，小茹採了59顆草莓，誰採的草莓比較多？

小威

十位	個位

小茹

十位	個位

（小威，小茹）採的草莓比較多。

六 填填看。（每答1分，共41分）

1. 下面全部的積木和幾個一樣多？記在位值表上。

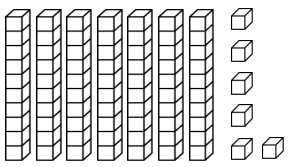

十位	個位

2. 6個十和13個一可以合成（　　）個十和（　　）個一。（答案填入1～9）

3. 10塊餅乾裝成一袋，姐姐買了4袋又17塊。
   (1) 17塊能裝成1袋又（　　）塊。
   (2) 4個十和17個一，合起來與5個十和（　　）個一一樣多，是（　　）。
   (3) 記在位值表上。

十位	個位

4. 每捆有10枝鉛筆，先數數看有幾枝鉛筆，再記在位值表上。



十位	個位

有（　　）捆和（　　）枝，
合起來有（　　）枝。

5. 下面是百數表的一部分，填入正確的數。

(1)

48		50
		70

(2)

	29	
38		

6. 將百數表中的空白部分填上數字。

								9	
			24				28		30
31				35	36				
			54						
71									80
						87	88	89	
91								99	

7. 姐姐有50枝蠟筆，拿走10枝，還有（　　）枝；再拿走10枝，還有（　　）枝蠟筆。

8. 弟弟有30張色紙，拿走1張，還有（　　）張；再拿走1張，還有（　　）張色紙。

七 挑戰題。（每格2分，共6分）

1. 在位值表上填入一個比93大的數。

十位	個位
9	3

十位	個位

2. 爸爸買了好多可樂，他將24罐可樂放進冰箱裡，其他的放在冰箱外面，如下圖。爸爸一共買了幾罐可樂？

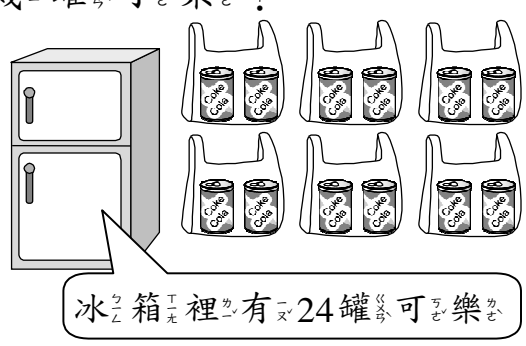

共買了（　　）罐可樂