_____國小　_____學年度

評量卷　數學領域　一下　範圍：4、100 以內的數

一　年　_____班　_____號　姓名：_____　得分：_____

一　看圖填填看。（每格 1 分，共 8 分）

1.

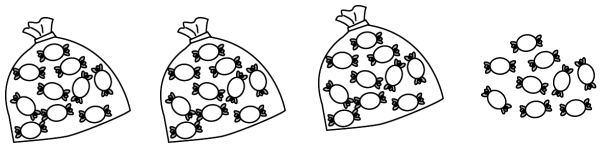

共有(　　)顆糖果，

再多 1 顆，共(　　)顆糖果；

再多 10 顆，共(　　)顆糖果。

2.

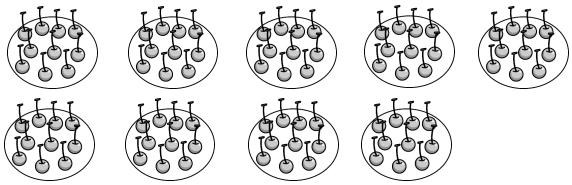

共有(　　)顆櫻桃，

拿走 10 顆，剩(　　)顆櫻桃；

再拿走 1 顆，剩(　　)顆櫻桃。

3. 橘子一袋 5 顆。



有(　　)顆橘子

4. 棒棒糖一組 2 枝。



有(　　)枝棒棒糖

二　按照數的順序填填看。（每格 1 分，共 17 分）

1. 47 ___ 49 ___ ___ 52 ___ 53

2. 40 ___ 50 ___ ___ 80 ___ 90 ___

3. ___ ___ 57 ___ 47 ___ ___ 17 ___ 7

4. ___ ___ 72 ___ 74 ___ 76 ___ ___ ___

5. ___ ___ 35 ___ 40 ___ ___ 55 ___ ___

三　先把 10 個、10 個圈起來，再數數看，有多少。（每答 1 分，共 4 分）

1.

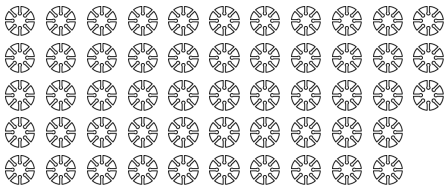

有(　　)個花片

2.

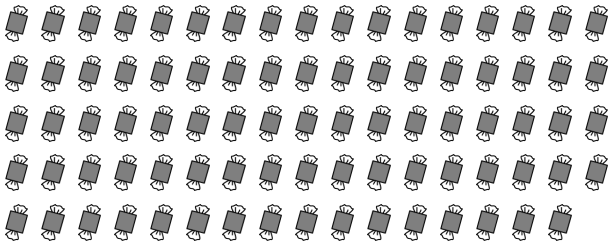

有(　　)顆軟糖

四　做做看。（每答 1 分，共 14 分）

1. 先在(　)裡寫出積木表示的數，再將比較大的數在□裡打✓。

(1)

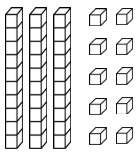

(　　)

(2)

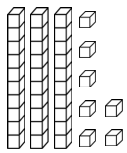

(　　)

2. 把比較大的數圈起來。

(1)

(2)



3. 把比 65 小的數圈起來。

(46 ， 59 ， 71 ， 38 ， 82)

4. 把比 50 大的數圈起來。

(34 ， 68 ， 94 ， 27 ， 45)

5. 觀察右邊的圖，圈一圈再填填看。

62	63	64	65
72	73	74	75
82	83	84	85
92	93	94	95

(1) 從 62 開始往下數，下面的數比上面的數(增加，減少)(　　)。

(2) 從 62 開始往右數，右邊的數比左邊的數(增加，減少)(　　)。

五 先將數字記在位值表上，再回答問題。(每答 1 分，共 10 分)

1. 小圓摺了 47 個星星，小圖摺了 40 個星星，誰摺的星星比較少？

小圓

十位	個位

小圖

十位	個位

(小圓 ，小圖)摺的星星比較少。

2. 小威和小茹採草莓，小威採了 63 顆草莓，小茹採了 59 顆草莓，誰採的草莓比較多？

小威

十位	個位

小茹

十位	個位

(小威 ，小茹)採的草莓比較多。

六 填填看。(每答 1 分，共 41 分)

1. 下面全部的積木和幾個一樣多？記在位值表上。

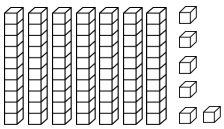

十位	個位

2. 6 個十和 13 個一可以合成
(　　)個十和(　　)個一。
(答案填入 1～9)

3. 10 塊餅乾裝成一袋，姐姐買了 4 袋又 17 塊。
(1) 17 塊能裝成 1 袋又(　　)塊。
(2) 4 個十和 17 個一，合起來與 5 個十和(　　)個一一樣多，是(　　)。
(3) 記在位值表上。

十位	個位

4. 每捆有 10 枝鉛筆，先數數看有幾枝鉛筆，再記在位值表上。

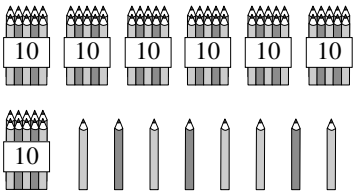

十位	個位

有(　　)捆和(　　)枝，
合起來有(　　)枝。

5. 下面是百數表的一部分，填入正確的數。

(1)

48		50
		70

(2)

	29	
38		

6. 將百數表中的空白部分填上數字。

								9	
			24				28		30
31				35	36				
			54						
71									80
						87	88	89	
91								99	

7. 姐姐有 50 枝蠟筆，拿走 10 枝，還有(　　)枝；再拿走 10 枝，還有(　　)枝蠟筆。

8. 弟弟有 30 張色紙，拿走 1 張，還有(　　)張；再拿走 1 張，還有(　　)張色紙。

七 挑戰題。(每格 2 分，共 6 分)

1. 在位值表上填入一個比 93 大的數。

十位	個位
9	3

十位	個位

2. 爸爸買了好多可樂，他將 24 罐可樂放進冰箱裡，其他的放在冰箱外面，如下圖。爸爸一共買了幾罐可樂？

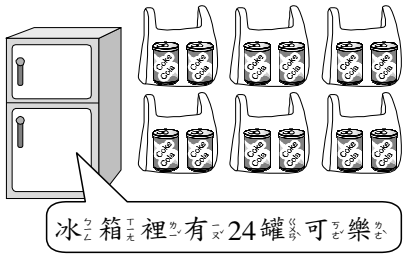

共買了 (　　) 罐可樂