_____國小　_____學年度

評量卷　數學領域　一下　範圍：8、兩位數的加減法

一　年　_____班　_____號　姓名：_____　得分：_____

## 一 看圖算算看。（每格 2 分，共 6 分）

1. 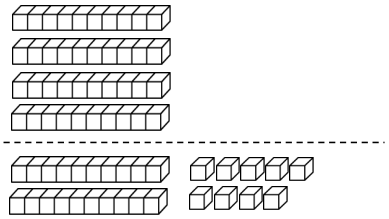

40＋29＝(　　)

2. 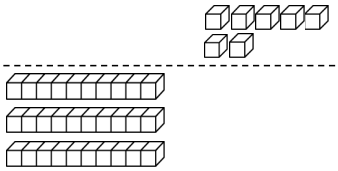

7＋30＝(　　)

3.

35＋11＝(　　)

## 二 先畫一畫、圈一圈，再算算看。（每答 2 分，共 22 分）

1. 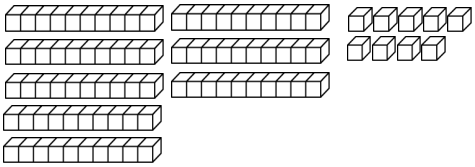

89－64＝(　　)

2.

49－8＝(　　)

3. 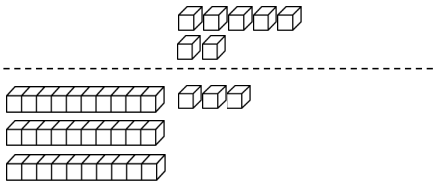

7＋(　　)＝(　　)

4. 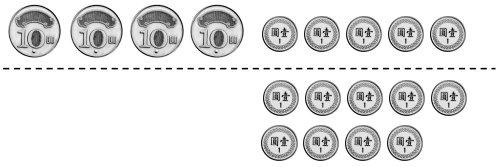

(　　)＋(　　)＝(　　)

## 三 畫⑩和①算算看。（每題 2 分，共 12 分）

1. 27＋32＝(　　)
2. 33＋9＝(　　)
3. 4＋58＝(　　)
4. 40－9＝(　　)
5. 60－20＝(　　)
6. 57－5＝(　　)

## 四 做做看。（每答 2 分，共 20 分）

1. 把算式連到正確的答案。

| | | |
|---|---|---|
| (1) 53－30 | (2) 67－25 | (3) 8＋15 |
| ㄅ 23 | ㄆ 42 | |
| (4) 83－41 | (5) 31＋11 | (6) 30－7 |

2. 將答案比較大的算式圈起來。

(1) 78－6　78－5

(2) 39－6　27－6

(3) 29－17　29－18

(4) 63－3　66－3

## 五 寫出算式做做看。(每題 3 分，共 12 分)

1. 小花有 45 張獎卡，老師再給她 22 張，小花共有幾張獎卡？

算式：

共有(　　)張獎卡

2. 小傑七月到圖書館借了 8 本書，八月借了 17 本書，兩個月共借了幾本書？

算式：

共借了(　　)本書

3. 弟弟有 68 顆彈珠，哥哥有 53 顆彈珠，弟弟比哥哥多幾顆彈珠？

算式：

多(　　)顆彈珠

4. 又綸原有 84 元，花了 5 元後，還剩下多少元？

算式：

還剩下(　　)元

## 六 看圖做做看，再用算式記下來。(每題 4 分，共 8 分)




1. 翔翔買了一輛 和一隻 ，要付多少元？

算式：

要付(　　)元

2. 買一隻 比買一顆 ，要多付幾元？

算式：

多付(　　)元

## 七 先畫⑩和①，再用算式記下來。(每題 3 分，共 12 分)

1. 東東有 27 顆糖果，老師又給他 4 顆，東東現在有多少顆糖果？

算式：

有(　　)顆糖果

2. 一盒馬卡龍有 56 顆，姐姐生日帶一盒馬卡龍請同學們吃，同學們共吃了 44 顆，還剩下幾顆馬卡龍？

算式：

還剩下(　　)顆馬卡龍

3. 媽媽買了 40 隻炸蝦，吃了 3 隻，剩下幾隻炸蝦？

算式：

剩下(　　)隻炸蝦

4. 小露有 21 朵玫瑰花，送給老師 6 朵，還有幾朵玫瑰花？

算式：

還有(　　)朵玫瑰花

## 八 挑戰題。(每格 4 分，共 8 分)

▲88－53＝35

88－3＝(　　)

88－43＝(　　)