_____國小　_____學年度

評量卷　數學領域　一下　範圍：9、分類整理

一　年　_____班　_____號　姓名：_____　得分：_____

一　選出正確的答案。（每題2分，共8分）

1.（　　）圍欄裡的豬有幾隻？

①3隻 ②4隻 ③6隻。



2.（　　）正方形有幾個？　①4個 ②5個 ③6個。



3.（　　）一年甲班票選班長，得票數最多的人就是班長，投票結果如下，誰當選了班長？　①小明 ②小天 ③小玉。

人名	畫記
小明	正丅
小天	正下
小玉	正正

4.（　　）布置教室用掉的圖釘數量紀錄如下表，數量最少的圖釘有幾個？　①4個 ②5個 ③6個。

種類	畫記
	○○○○○ ○
	○○○○○ ○○○○
	○○○○○ ○○
	○○○○○

二　分一分。（每格3分，共21分）



小琪的分法

形狀	圓形	正方形	三角形
數量(個)			

小芳的分法

花色	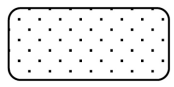		
數量(個)			

▲不管用什麼方法分類，全部都是(　　)個形狀。

三　看圖填填看。（每答2分，共14分）

▲四個小朋友一起玩投球，○表示投進，╳表示沒投進。

翠果	╳	╳	○	╳	╳	╳	○	○
菊青	○	╳	○	○	○	╳	╳	○
福子	╳	╳	○	○	╳	○	╳	○
采月	○	○	╳	○	╳	○	○	○

(1) 每個人各投進幾次？

翠果	菊青	福子	采月
(　　)次	(　　)次	(　　)次	(　　)次

(2) 投進最多次的人是誰？圈圈看。

（翠果，菊青，福子，采月）

(3) 投進最多和最少的次數，相差(　　)次。

(4) 每人都投幾次？(　　)次。

四 看圖做做看。（每答2分，共48分）

1. 每數一個就在上面畫一個記號，先用「正」字畫記後，再寫出數量。



動物			
畫記			
數量（票）			

(1) 哪一種動物最多？

（ ， ， ）

(2) 和 一共有（　　）隻。

2. 下圖是爸爸買的壽司餐盒，看圖回答問題。



(1) 用「正」字畫記，再寫出數量。

種類	畫記	數量（個）

(2) 哪一種壽司最多？圈圈看。

（ ， ， ）

(3) 哪一種壽司最少？圈圈看。

（ ， ， ）

3. 一年二班票選吉祥動物，每位學生將自己的貼紙貼在喜歡的吉祥動物下方。



(1) 哪一種吉祥動物得到的貼紙最多？圈圈看。

（ ， ， ， ）。

(2) 哪一種吉祥動物得到的貼紙最少？圈圈看。

（ ， ， ， ）。

4. 箱子裡有紅、黃、藍三種顏色的球，下面是小雄所抽出來球的紀錄，畫一個○表示抽到一次。

紅球	○○○○○　○○
黃球	○○○○
藍球	○○○○○　○○○○

(1) 每種顏色的球各抽到幾次？填填看。

紅球	黃球	藍球
（　　）次	（　　）次	（　　）次

(2) 接第(1)題，小雄的紀錄不完整，請幫他完成。

紅球	正
黃球	下
藍球	正丅

五 挑戰題。（每答3分，共9分）

▲老師調查班上15個同學最喜歡的小吃，如如不小心把表格弄髒了，看下表再回答問題。

小吃	臭豆腐	甜不辣	雞排
票數（票）		7	5

(1) 最喜歡臭豆腐的有（　　）票。

(2) 票數最多的小吃是？
（臭豆腐，甜不辣，雞排）

(3) 票數最多和最少的小吃，相差（　　）票。