翰林校用 數學 第03回

數學 1下 第3回 3、20以內的減法

一年____班____號
姓名：_____
得分

一 看圖做做看，再填答案：

每題4分，共16分

1. 

14－5＝□

2. 

15－7＝□

3. 

12－7＝□

4. 

13－8＝□

二 小朋友一起蒐集卡片。做做看，寫出算式和答案：

每答3分，共30分

阿苑有13張

阿凌有9張

小儀有6張

小景有16張

1. 小景和阿凌的卡片誰比較多？多幾張？

算式：16－（　　）＝（　　）

（小景，阿凌）的卡片多，多（　　）張

2. 阿苑和小儀的卡片誰比較多？多幾張？

算式：

（阿苑，小儀）的卡片多，多（　　）張

3. 小景和小儀的卡片誰比較少？少幾張？

算式：

（小景，小儀）的卡片少，少（　　）張

三 先想一想，再填填看：每格2分，共12分

1. 12－3＝9
11－3＝（　　）
10－3＝（　　）
9－3＝（　　）

2. 16－9＝7
16－8＝（　　）
16－7＝（　　）
16－6＝（　　）

四 寫出算式和答案：每題6分，共42分

1. 水果店有15盒蘋果，今天賣掉9盒，還有幾盒蘋果？

算式：

還有（　　）盒蘋果

2. 哥哥和弟弟玩踢毽子，哥哥踢了13下，弟弟踢了5下，弟弟比哥哥少踢了幾下？

算式：

少踢了（　　）下

3. 小美和小花下象棋，小美贏了12局，小花贏了5局，小美比小花多贏了幾局？

算式：

多贏了（　　）局

4. 媽媽煮了16顆大湯圓，多多吃了7顆，還剩幾顆大湯圓？

算式：

還剩（　　）顆大湯圓

5. 老師有11頂帽子，發給9個小朋友每人一頂，老師還剩下幾頂帽子？

算式：

還剩下（　　）頂帽子

6. 有9張遊樂園門票，想發給17個小朋友每人一張，不夠幾張遊樂園門票？

算式：

不夠（　　）張遊樂園門票

7. 籃子裡有15顆紅球和6顆白球，紅球和白球相差幾顆？

算式：

相差（　　）顆

版權所有・翻印必究