翰林校用 數學 第05回

數學 1 下　第5回　5、形狀與形體　一年　班　號　姓名：

得分

一 沿虛線剪下來的圖形是哪一個？連連看：每題 3 分，共 12 分

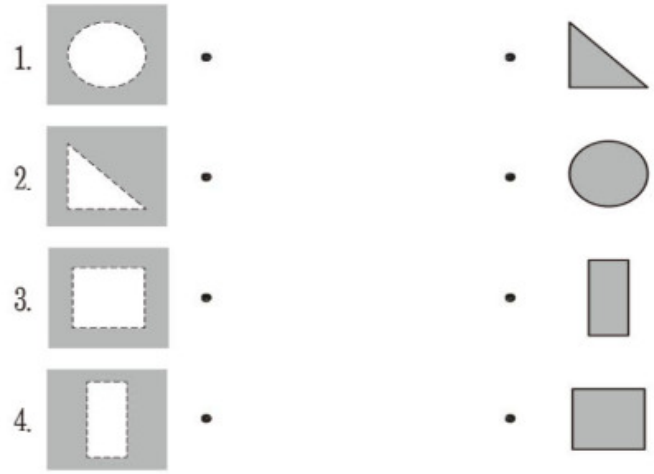

二 把和左邊形狀、大小都一樣的圖形圈起來：每題 4 分，共 8 分

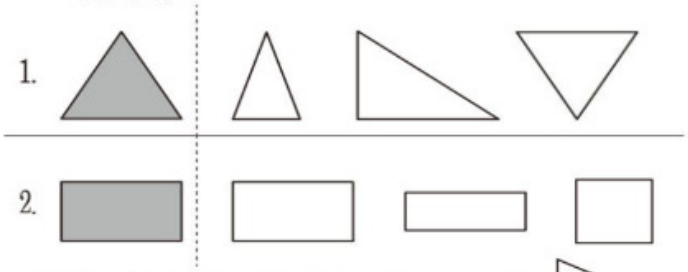

三 哪些圖形是用 2 個 拼出來的？圈圈看：每題 4 分，共 24 分

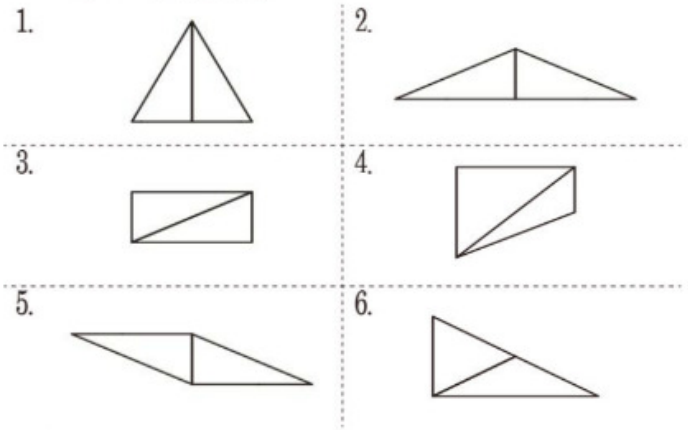

四 請找出被移動的那一塊三角形，在 □ 裡打✓：4 分

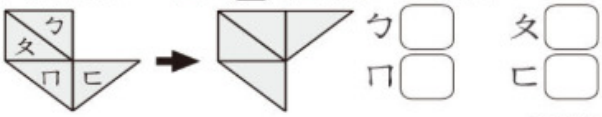

ㄅ□　ㄆ□
ㄇ□　ㄈ□

五 小司用五巧板拼的圖形，再放入哪一塊就可以拼成一條魚？圈圈看：4 分

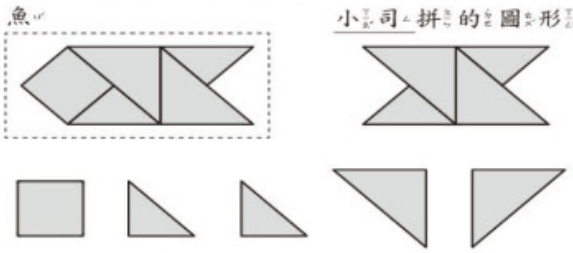

六 下面的圖形是用了幾個 △ 拼出來的？填填看：每題 4 分，共 8 分

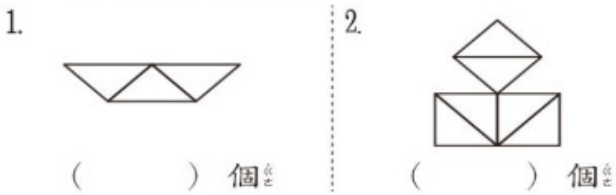

1. (　　) 個
2. (　　) 個

七 數一數，下面的形體用了幾個 ？每題 4 分，共 16 分

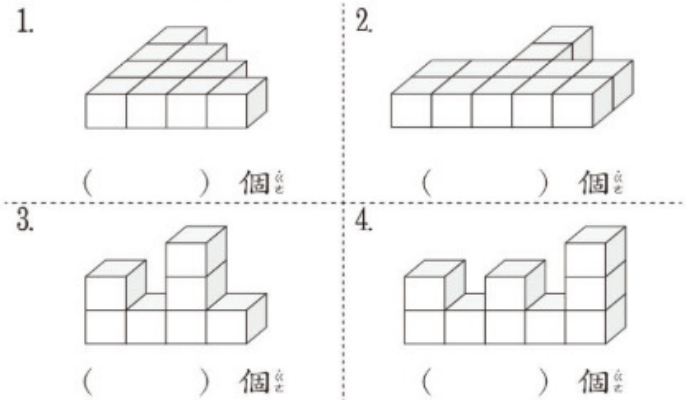

1. (　　) 個
2. (　　) 個
3. (　　) 個
4. (　　) 個

八 下面哪些形體是用了 8 個 排出來的？在 (　　) 裡畫○：每題 4 分，共 24 分

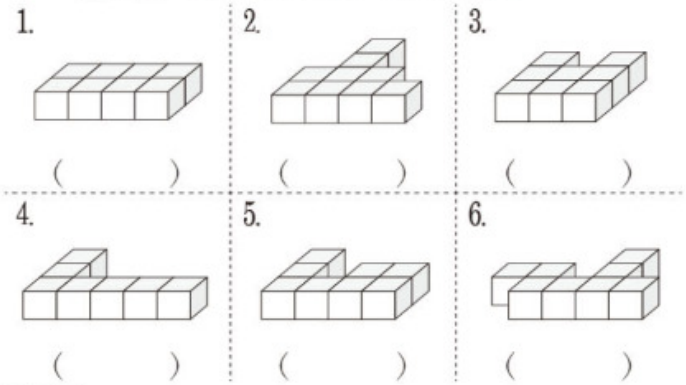

1. (　　)
2. (　　)
3. (　　)
4. (　　)
5. (　　)
6. (　　)

版權所有・翻印必究