翰林校用 數學 第06回

第6回 數數看有多少元

班＿＿ 號 姓名：＿＿＿＿ 得分

一 數數看，錢包裡有多少元？

每題 5 分，共 20 分

1.

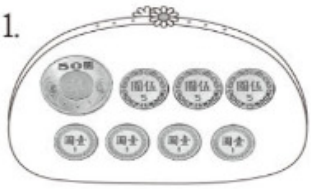

（　　）元

2.

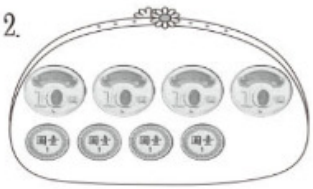

（　　）元

3.

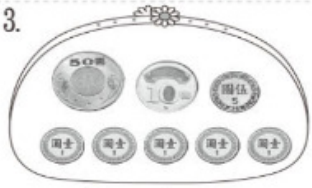

（　　）元

4.

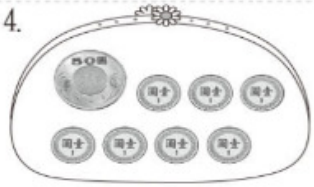

（　　）元

二 圈出和左邊一樣多的錢：

每題 5 分，共 20 分

1.

2.

3.

4.

三 用 10 表示 ，用 1 表示 。畫畫看，怎麼付錢才會剛好？

每題 6 分，共 24 分

1. 姐姐買一盒 47 元的蠟筆。

2. 哥哥買一顆 63 元的棒球。

3. 牙刷

4. 牙膏

四 數數看：每題 4 分，共 8 分

1. 小傑用下面的錢買了一把尺，他付了多少元？

付了（　　）元

2. 曉婷用下面的錢買了一包書套，她付了多少元？

付了（　　）元

五 圈圈看：每答 4 分，共 16 分

1. 小玉和野口都想買一盒 68 元的彩色筆，他們要怎麼付錢才會剛好？

小玉的付法

野口的付法

2. 佳宜和小威都想要買一碗 80 元的拉麵，他們的錢夠不夠買？

佳宜的錢

（夠，不夠）買

小威的錢

（夠，不夠）買

六 下面的商品要怎麼付錢才會剛好？圈圈看：每題 4 分，共 12 分

1. 蛋糕

2. 巧克力

3. 漢堡

版權所有・翻印必究