翰林校用 數學 第09回

8、兩位數的加減法(1)

一年____班____號
姓名：_____

得分

一 看圖算算看：每題 2 分，共 6 分

1.

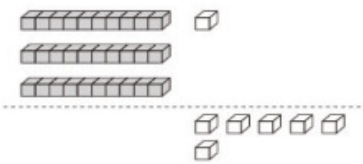

31＋6＝（　　）

2.

47－12＝（　　）

3.

58－26＝（　　）

二 畫⑩和①算算看：每題 5 分，共 10 分

1. 86－33＝（　　）

2. 70－20＝（　　）

三 先圈一圈，再算算看：每題 4 分，共 12 分

1. 17＋6＝（　　）

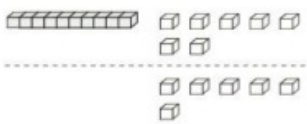

2. 29＋8＝（　　）

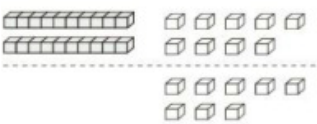

3. 33＋7＝（　　）

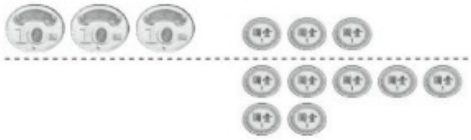

四 將答案比較大的算式圈起來：每題 4 分，共 12 分

1. 52＋8　　52＋7

2. 66－9　　67－9

3. 88－10　　88－20

五 把答案是 25 的畫○，答案是 38 的打✓，答案是 42 的畫△：每題 4 分，共 24 分

1. 16＋9（　　）
2. 11＋27（　　）
3. 57－32（　　）
4. 68－30（　　）
5. 55－13（　　）
6. 21＋21（　　）

六 寫出算式做做看：每題 6 分，共 36 分

1. 池塘裡有 27 隻青蛙，又跳來了 9 隻，現在池塘裡共有幾隻青蛙？

算式：

共有（　　）隻青蛙

2. 遊覽車上原有 34 個人，後來又上來 4 個人，遊覽車上現在共有幾個人？

算式：

共有（　　）個人

3. 小景有 49 張貼紙，送給小儀 25 張，還剩下幾張貼紙？

算式：

還剩下（　　）張貼紙

4. 阿丹有 53 元，買了一個 42 元的漢堡後，他還有幾元？

算式：

還有（　　）元

5. 一盒巧克力有 12 顆，阿凌買了 2 盒，共有幾顆巧克力？

算式：

共有（　　）顆巧克力

6. 草地上有 48 隻白羊，走了 31 隻後，還剩下幾隻白羊？

算式：

剩下（　　）隻白羊

版權所有・翻印必究