翰林校用 數學 第10回



# 8、兩位數的加減法(2)

一年____班____號
姓名：_____

得分

## 一 看圖算算看：每題 4 分，共 16 分

1. 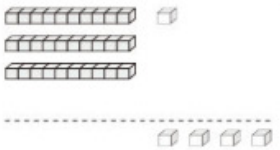

31＋4＝（　　）

2. 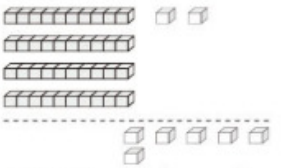

42＋6＝（　　）

3.

17＋22＝（　　）

4. 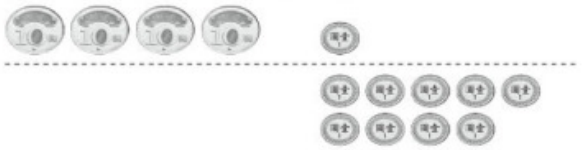

41＋9＝（　　）

## 二 畫⑩和①算算看：每題 5 分，共 10 分

1. 55－23＝（　　）

2. 43－6＝（　　）

## 三 先畫⑩和①，再用算式記下來：每題 6 分，共 12 分

1. 桌上有 28 杯綠茶和 16 杯紅茶，綠茶比紅茶多幾杯？

算式：

多（　　）杯

2. 小美買了一份 30 元的雞蛋糕和一杯 15 元的冬瓜茶，共要付多少元？

算式：

共要付（　　）元

## 四 把算式連到正確的答案：每題 4 分，共 16 分

1. 37＋5 •　　• ㄅ 58
2. 12＋46 •　　• ㄆ 37
3. 45－8 •　　• ㄇ 49
4. 69－20 •　　• ㄈ 42

## 五 算算看：每題 4 分，共 16 分

1. 23＋8＝□

2. 43＋15＝□

3. 67－23＝□

4. 55－8＝□

## 六 寫出算式做做看：每題 6 分，共 30 分

1. 冰箱裡有 8 顆雞蛋和 12 顆鴨蛋，一共有幾顆蛋？

算式：

一共有（　　）顆蛋

2. 小星有 31 張小卡，小塵有 45 張小卡，小星比小塵少了幾張小卡？

算式：

少了（　　）張小卡

3. 罐子裡原有 38 隻紙鶴，又放進去 6 隻紙鶴，罐子裡共有多少隻紙鶴？

算式：

共有（　　）隻紙鶴

4. 安安有 1 個 50 元硬幣，買了 1 張 8 元的郵票後，還剩下多少元？

算式：

還剩下（　　）元

5. 嵐嵐買了 36 顆粽子，送給小宋 6 顆，嵐嵐還有幾顆粽子？

算式：

還有（　　）顆粽子

版權所有・翻印必究