翰林校用 數學 第12回

數學 1下 第12回 第三次段考複習考查（第1～3單元）（適用三次考查）

一年____班____號 姓名：_____ 得分

一 共有多少朵花？看圖填填看：每格1分，共6分

1. 

□＋□＝□

2. 

□＋□＝□

二 把答案是7的打✓，是13的畫○：每題1分，共6分

1. 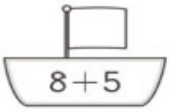

2. 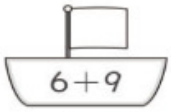

3. 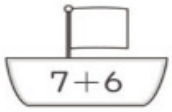

4. 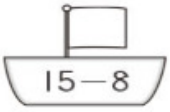

5. 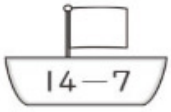

6. 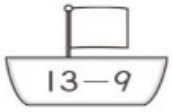

三 把算式連到正確的答案：每題1分，共6分

1. 5＋9 • • ㄅ 5
2. 3＋8 • • ㄆ 6
3. 9＋7 • • ㄇ 9
4. 15－9 • • ㄈ 11
5. 12－7 • • ㄉ 14
6. 13－4 • • ㄊ 16

四 看圖回答問題：每答2分，共6分

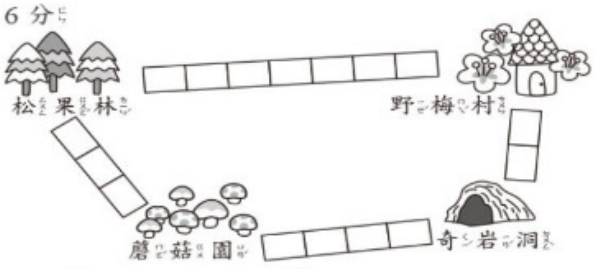

1. 從 走到 ，要走（　　）個□。
2. 從 經過 走到 ，共要走幾個□？

算式：

共要走（　　）個□

五 每個□都一樣大，看圖回答問題：每答2分，共10分

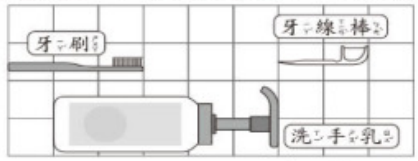

1. 牙刷和（　　）個□一樣長。
2. 牙線棒和（　　）個□一樣長。
3. 洗手乳和（　　）個□一樣長。
4. 洗手乳和牙刷合起來和幾個□一樣長？

算式：

和（　　）個□一樣長

六 看圖填填看、圈圈看：每題2分，共8分

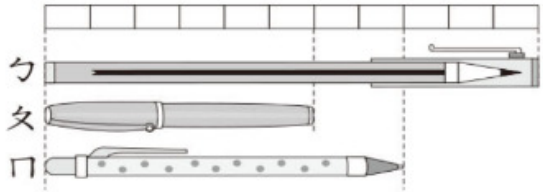

1. ㄅ筆和（　　）個□一樣長。
2. ㄆ筆和（　　）個□一樣長。
3. ㄇ筆和（　　）個□一樣長。
4. （ㄅ筆，ㄆ筆，ㄇ筆）最長。

七 畫○算算看，並寫出算式和答案：每題4分，共8分

1. 小香有12顆巧克力，小蜜有8顆巧克力，小蜜比小香少幾顆巧克力？

小香

小蜜

算式：

少（　　）顆巧克力

2. 玉兒有11張貼紙，如如有6張貼紙，玉兒比如如多幾張貼紙？

玉兒

如如

算式：

多（　　）張貼紙

版權所有・翻印必究

〔背面還有試題〕